Тренировочная работа в формате ОГЭ

по МАТЕМАТИКЕ

Дата: __ _____ 2025 года

Вариант _____

Выполнена: ФИО_____ класс _____

Инструкция по выполнению работы

Работа состоит из двух частей, включающих в себя 25 заданий. Часть 1 содержит 19 заданий, часть 2 содержит 6 задананий с развёрнутым ответом.

На выполнение работы по математике отводится 3 часа 55 минут (235 минут).

Ответы к заданиям 7 и 13 запишите в виде одной цифры, которая соответствует номеру правильного ответа.

Для остальных заданий части 1 ответом является число или последовательность цифр. Если получилась обыкновенная дробь, ответ запишите в виде десятичной.

Решения заданий части 2 и ответы к ним запишите на отдельном листе бумаги. Задания можно выполнять в любом порядке. Текст задания переписывать не надо, необходимо только указать его номер.

Сначала выполняйте задания части 1. Начать советуем с тех заданий, которые вызывают у Вас меньше затруднений, затем переходите к другим заданиям. Для экономии времени пропускайте задание, которое не удаётся выполнить сразу, и переходите к следующему. Если у Вас останется время, Вы сможете вернуться к пропущенным заданиям.

При выполнении части 1 все необходимые вычисления, преобразования выполняйте в черновике. **Записи в черновике, а также в тексте контрольных измерительных материалов не учитываются при оценивании работы.**

Если задание содержит рисунок, то на нём непосредственно в тексте работы можно выполнять необходимые Вам построения. Рекомендуем внимательно читать условие и проводить проверку полученного ответа.

При выполнении работы Вы можете воспользоваться справочными материалами, выданными вместе с вариантом КИМ, и линейкой.

Баллы, полученные Вами за выполненные задания, суммируются.

Постарайтесь выполнить как можно больше заданий и набрать наибольшее количество баллов.

После завершения работы проверьте, чтобы ответ на каждое задание был записан под правильным номером.

Желаем успеха!

© 2025 год. Вариант сгенерирован на сайте kim365.ru
Публикация в интернете или печатных изданиях без письменного согласия запрещена

Часть 1

Ответами к заданиям 1-19 являются число или последовательность цифр.

Прочитайте внимательно текст и выполните задания 1-5.

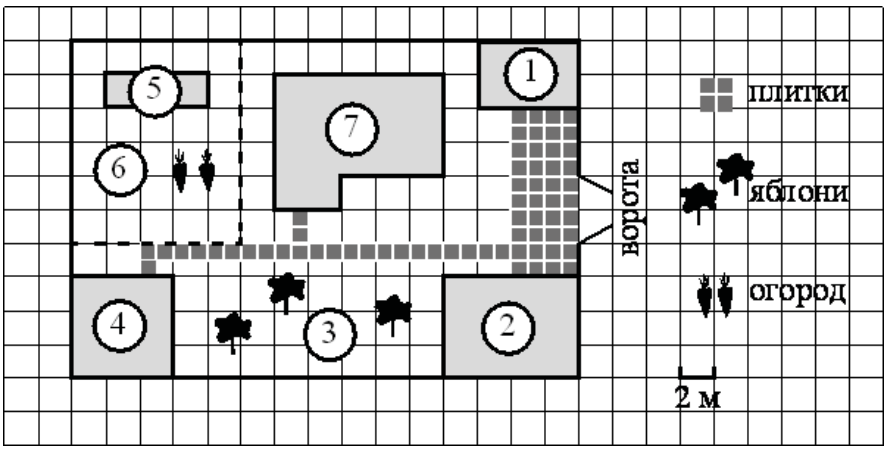

На плане изображён дачный участок по адресу: п. Сосновка, ул. Зелёная, д. 19 (сторона каждой клетки на плане равна 2 м). Участок имеет прямоугольную форму. Выезд и въезд осуществляются через единственные ворота.

При входе на участок слева от ворот находится гараж. Справа от ворот находится сарай площадью 24 кв. м, а чуть подальше — жилой дом. Напротив жилого дома расположены яблоневые посадки. Также на участке есть баня, к которой ведёт дорожка, выложенная плиткой, и огород с теплицей внутри (огород отмечен на плане цифрой 6).

Все дорожки внутри участка имеют ширину 1 м и вымощены тротуарной плиткой размером 1 м×1 м. Между гаражом и сараем находится площадка, вымощенная такой же плиткой.

К участку подведено электричество. Имеется магистральное газоснабжение.

1 Для объектов, указанных в таблице, определите, какими цифрами они обозначены на плане. Заполните таблицу, в бланк ответов перенесите последовательность четырёх цифр без пробелов, запятых и других символов.

Объекты	жилой дом	яблони	теплица	гараж
Цифры				

2 Плитки для садовых дорожек продаются в упаковках по 10 штук. Сколько упаковок плиток понадобилось, чтобы выложить все дорожки и площадку между сараем и гаражом?

Ответ: _____

3 Найдите площадь, которую занимает баня. Ответ дайте в квадратных метрах.

Ответ: _____

© 2025 год. Вариант сгенерирован на сайте kim365.ru
Публикация в интернете или печатных изданиях без письменного согласия запрещена

4 На сколько процентов площадь, которую занимает гараж, больше площади, которую занимает теплица?

Ответ: _____

5 Хозяин участка планирует установить в жилом доме систему отопления. Он рассматривает два варианта: электрическое или газовое отопление. Цены на оборудование и стоимость его установки, данные о расходе газа, электроэнергии и их стоимости даны в таблице.

Нагреватель (котёл)	Прочее оборудование и монтаж	Средн. расход газа/ средн. потребл. мощность	Стоимость газа/электро-энергии	
Газовое отопление	18 000 руб.	13 896 руб.	1,6 куб. м/ч	4,7 руб./куб. м
Электр. отопление	15 000 руб.	9 000 руб.	4,7 кВт	4,4 руб./(кВт · ч)

Обдумав оба варианта, хозяин решил установить газовое отопление. Через сколько часов непрерывной работы отопления экономия от использования газа вместо электричества компенсирует разницу в стоимости покупки и установки газового и электрического оборудования?

Ответ: _____

6 Найдите значение выражения $7{,}7 \cdot 5{,}3$.

Ответ: _____

7 На координатной прямой отмечены числа p, q и r.



Какая из разностей $q-p$, $r-q$, $p-r$ отрицательна?

1) $q-p$
2) $r-q$
3) $p-r$
4) ни одна из них

Ответ: ☐

8 Найдите значение выражения $\sqrt{5^6}$.

Ответ: _____

9 Найдите корень уравнения $5\,(x+9)=-8$.

Ответ: _____

© 2025 год. Вариант сгенерирован на сайте kim365.ru
Публикация в интернете или печатных изданиях без письменного согласия запрещена

10 Вероятность того, что новая шариковая ручка пишет плохо (или не пишет), равна 0,06. Покупатель в магазине выбирает одну шариковую ручку. Найдите вероятность того, что эта ручка пишет хорошо.

Ответ: _____

11 На рисунках изображены графики функций вида $y = ax^2 + bx + c$. Установите соответствие между знаками коэффициентов a и c и графиками функций.

КОЭФФИЦИЕНТЫ

А) $a > 0, c > 0$ **Б)** $a < 0, c > 0$ **В)** $a > 0, c < 0$

ГРАФИКИ

1)

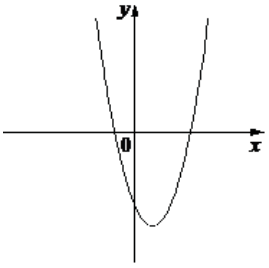

2)

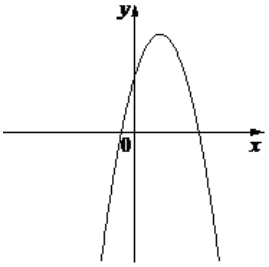

3)

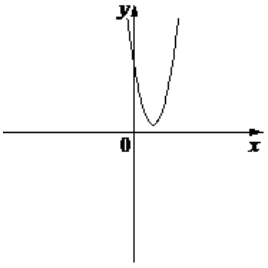

В таблице под каждой буквой укажите соответствующий номер.

Ответ:

А	Б	В

12 Кинетическая энергия тела массой m кг, двигающегося со скоростью v, $\frac{\text{м}}{\text{с}}$, вычисляется по формуле

$$E = \frac{mv^2}{2}$$

и измеряется в джоулях (Дж). Известно, что автомобиль массой 1600 кг обладает кинетической энергией 180 тысяч джоулей. Найдите скорость этого автомобиля в метрах в секунду.

Ответ: _____

13 Укажите неравенство, решение которого изображено на рисунке.



1) $x^2 - 7x < 0$

2) $x^2 - 49 > 0$

3) $x^2 - 7x > 0$

4) $x^2 - 49 < 0$

Ответ: ☐

© 2025 год. Вариант сгенерирован на сайте kim365.ru
Публикация в интернете или печатных изданиях без письменного согласия запрещена

14 При проведении опыта вещество равномерно охлаждали в течение 10 минут. При этом каждую минуту его температура уменьшалась на $9\,^{\circ}\mathrm{C}$. Найдите температуру вещества в градусах Цельсия через 6 минут после начала опыта, если начальная температура вещества составляла $-6\,^{\circ}\mathrm{C}$.

Ответ: _____

15 Сторона равностороннего треугольника равна $10\sqrt{3}$. Найдите медиану этого треугольника.

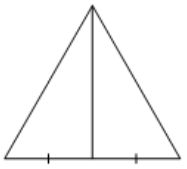

Ответ: _____

16 Сторона квадрата равна $24\sqrt{2}$. Найдите радиус окружности, описанной около этого квадрата.

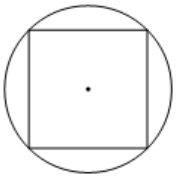

Ответ: _____

17 В ромбе $ABCD$ угол ABC равен 82°. Найдите угол ACD. Ответ дайте в градусах.

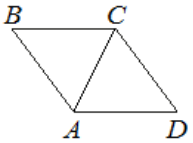

Ответ: _____

18 На клетчатой бумаге изображён треугольник ABC. Во сколько раз отрезок BM короче отрезка CM?

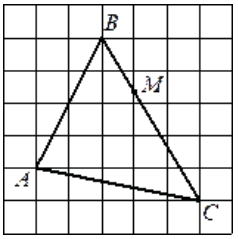

Ответ: _____

19 Какое из следующих утверждений является истинным высказыванием?

1) Основания любой трапеции параллельны.
2) Тангенс любого острого угла меньше единицы.
3) Сумма углов любого треугольника равна 360 градусам.

В ответ запишите номер истинного высказывания.

Ответ: _____

© 2025 год. Вариант сгенерирован на сайте kim365.ru
Публикация в интернете или печатных изданиях без письменного согласия запрещена

Часть 2

При выполнении заданий 20-25 используйте отдельный лист бумаги. Сначала укажите номер задания, а затем запишите его решение и ответ. Пишите чётко и разборчиво.

20 Найдите значение выражения $11a - 7b + 21$, если $\dfrac{4a - 5b + 6}{5a - 4b + 6} = 3$.

Ответ: _____

21 Два автомобиля одновременно отправляются в 540-километровый пробег. Первый едет со скоростью на 30 км/ч большей, чем второй, и прибывает к финишу на 3 ч раньше второго. Найдите скорость первого автомобиля.

Ответ: _____

22 Постройте график функции $y = \dfrac{\left(x^2 + 6,25\right)(x - 1)}{1 - x}$.

Определите, при каких значениях k прямая $y = k\,x$ имеет с графиком ровно одну общую точку.

Ответ: _____

23 Высота *AH* ромба *ABCD* делит сторону *CD* на отрезки *DH* = 21 и *CH* = 8. Найдите высоту ромба.

Ответ: _____

24 Сторона *BC* параллелограмма *ABCD* вдвое больше стороны *CD*. Точка *K* — середина стороны *BC*. Докажите, что *DK* — биссектриса угла *ADC*.

Ответ: _____

25 Окружность с центром на стороне *AC* треугольника *ABC* проходит через вершину *C* и касается прямой *AB* в точке *B*. Найдите *AC*, если диаметр окружности равен 16, а *AB* = 15.

Ответ: _____

© 2025 год. Вариант сгенерирован на сайте kim365.ru
Публикация в интернете или печатных изданиях без письменного согласия запрещена

© 2025 год. Вариант сгенерирован на сайте kim365.ru
Публикация в интернете или печатных изданиях без письменного согласия запрещена