Ответы и решения

1	195	195	195
2	90	90	90
3	0,4	0,4	0,4
4	614,6	614,6	614,6
5	2,3	2,3	2,3
6	-0,68	-0,68	-0,68
7	2	2	2
8	8	8	8
9	-3	-3	-3
10	0,5	0,5	0,5
11	312	312	312
12	122	122	122
13	2	2	2
14	10	10	10
15	39	39	39
16	14	14	14
17	2	2	2
18	1	1	1
19	1	1	1

© 2026 год. Вариант сгенерирован на сайте kim365.ru
Публикация в интернете или печатных изданиях без письменного согласия запрещена

20 **Решение.**

Пусть $(x-1)^2=t$, где $t\geq 0$. Тогда уравнение примет вид:

$t^2-2t-3=0;\quad D=(-2)^2-4\cdot 1\cdot(-3)=16;$

$$\left[\begin{array}{l} t=\dfrac{2+4}{2}=3, \\ t=\dfrac{2-4}{2}=-1<0. \end{array}\right.$$

Возвращаясь к прежней переменной, получим:

$$(x-1)^2=3\quad\Leftrightarrow\quad\left[\begin{array}{l} x-1=-\sqrt{3}, \\ x-1=\sqrt{3} \end{array}\right.\quad\Leftrightarrow\quad\left[\begin{array}{l} x=1-\sqrt{3}, \\ x=1+\sqrt{3}. \end{array}\right.$$

Решение.

Пусть $(x-1)^2=t$, где $t\geq 0$. Тогда уравнение примет вид:

$t^2-2t-3=0;\quad D=(-2)^2-4\cdot 1\cdot(-3)=16;$

$$\left[\begin{array}{l} t=\dfrac{2+4}{2}=3, \\ t=\dfrac{2-4}{2}=-1<0. \end{array}\right.$$

Возвращаясь к прежней переменной, получим:

$$(x-1)^2=3\quad\Leftrightarrow\quad\left[\begin{array}{l} x-1=-\sqrt{3}, \\ x-1=\sqrt{3} \end{array}\right.\quad\Leftrightarrow\quad\left[\begin{array}{l} x=1-\sqrt{3}, \\ x=1+\sqrt{3}. \end{array}\right.$$

Ответ: $1-\sqrt{3};\quad 1+\sqrt{3}.$

Решение.

Пусть $(x-1)^2=t$, где $t\geq 0$. Тогда уравнение примет вид:

$t^2-2t-3=0;\quad D=(-2)^2-4\cdot 1\cdot(-3)=16;$

$$\left[\begin{array}{l} t=\dfrac{2+4}{2}=3, \\ t=\dfrac{2-4}{2}=-1<0. \end{array}\right.$$

Возвращаясь к прежней переменной, получим:

$$(x-1)^2=3\quad\Leftrightarrow\quad\left[\begin{array}{l} x-1=-\sqrt{3}, \\ x-1=\sqrt{3} \end{array}\right.\quad\Leftrightarrow\quad\left[\begin{array}{l} x=1-\sqrt{3}, \\ x=1+\sqrt{3}. \end{array}\right.$$

Ответ: $1-\sqrt{3};\quad 1+\sqrt{3}.$

© 2026 год. Вариант сгенерирован на сайте kim365.ru
Публикация в интернете или печатных изданиях без письменного согласия запрещена

21 **Решение.**

Пусть x км/ч – скорость первого автомобиля, тогда скорость второго автомобиля x – 20 км/ч.

	v (км/ч)	t (ч)	S (км)
Первый автомобиль	x	$\frac{400}{x}$	400
Второй автомобиль	$x-20$	$\frac{400}{x-20}$	400

Так как первый автомобиль приехал на 1 час раньше второго, то его время в пути на 1 час меньше. Следовательно:

$$\frac{400}{x-20}-\frac{400}{x}=1 \quad \Leftrightarrow \quad \frac{400x-400(x-20)}{x(x-20)}=1 \quad \Leftrightarrow \quad \frac{400\cdot 20}{x(x-20)}=1 \quad \Leftrightarrow$$

$$\Leftrightarrow \quad \begin{cases} x(x-20)=400\cdot 20, \\ x-20\neq 0, \\ x\neq 0 \end{cases} \quad \Leftrightarrow \quad \begin{cases} x^2-20x-8000=0, \\ x\neq 20, \\ x\neq 0. \end{cases}$$

Решим первое уравнение последней системы:

$$x^2-20x-8000=0; \quad D=(-20)^2-4\cdot 1\cdot(-8000)=32400;$$

$$\left[\begin{array}{l} x=\frac{20+180}{2}=100, \\ x=\frac{20-180}{2}=-80. \end{array}\right.$$

Корень $x=-80$ не подходит по смыслу задачи, так как $x>0$. Поэтому скорость первого автомобиля, равна 100 км/ч.

Решение.

Пусть x км/ч – скорость первого автомобиля, тогда скорость второго автомобиля x – 20 км/ч.

	v (км/ч)	t (ч)	S (км)
Первый автомобиль	x	$\frac{400}{x}$	400
Второй автомобиль	$x-20$	$\frac{400}{x-20}$	400

Так как первый автомобиль приехал на 1 час раньше второго, то его время в пути на 1 час меньше. Следовательно:

$$\frac{400}{x-20}-\frac{400}{x}=1 \quad \Leftrightarrow \quad \frac{400x-400(x-20)}{x(x-20)}=1 \quad \Leftrightarrow \quad \frac{400\cdot 20}{x(x-20)}=1 \quad \Leftrightarrow$$

$$\Leftrightarrow \quad \begin{cases} x(x-20)=400\cdot 20, \\ x-20\neq 0, \\ x\neq 0 \end{cases} \quad \Leftrightarrow \quad \begin{cases} x^2-20x-8000=0, \\ x\neq 20, \\ x\neq 0. \end{cases}$$

Решим первое уравнение последней системы:

$$x^2-20x-8000=0; \quad D=(-20)^2-4\cdot 1\cdot(-8000)=32400;$$

$$\left[\begin{array}{l} x=\frac{20+180}{2}=100, \\ x=\frac{20-180}{2}=-80. \end{array}\right.$$

Корень $x=-80$ не подходит по смыслу задачи, так как $x>0$. Поэтому скорость первого автомобиля, равна 100 км/ч.

Ответ: 100 км/ч.

© 2026 год. Вариант сгенерирован на сайте kim365.ru
Публикация в интернете или печатных изданиях без письменного согласия запрещена

x^2

D

$(-$

$\left[\begin{array}{l} \\ \\ \end{array}\right.$

Ко

по

см

ка

ск

ав

10

От

© 2026 год. Вариант сгенерирован на сайте kim365.ru
Публикация в интернете или печатных изданиях без письменного согласия запрещена

22 **Решение.**

Для построения графика заданной функции воспользуемся тем, что:

$$|x+8| = \begin{cases} x+8 & \text{при} \quad x \geq -8, \\ -x-8 & \text{при} \quad x < -8. \end{cases}$$

Тогда заданная функция примет вид:

$$y = \begin{cases} 3(x+8) - x^2 - 14x - 48 & \text{при} \quad x \geq -8, \\ 3(-x-8) - x^2 - 14x - 48 & \text{при} \quad x < -8 \end{cases} \Leftrightarrow \quad y = \begin{cases} -x^2 - 11x - 24 & \text{при} \quad x \geq -8, \\ -x^2 - 17x - 72 & \text{при} \quad x < -8. \end{cases}$$

Таким образом, получена кусочная функция.

Графиком квадратичной функции $y = -x^2 - 17x - 72$ является парабола, ветви которой направлены вниз. Найдём вершину параболы:

$$x_B = -\frac{b}{2a} = -\frac{-17}{2 \cdot (-1)} = -8,5.$$

Для построения графика $y = -x^2 - 17x - 72$ при $x < -8$ возьмём значения $x = -10$, $x = -9$, $x = -8,5$ и $x = -8$:

$y(-10) = -(-10)^2 - 17 \cdot (-10) - 72 = -100 + 170 - 72 = -2;$

$y(-9) = -(-9)^2 - 17 \cdot (-9) - 72 = -81 + 153 - 72 = 0;$

$y(-8,5) = -(-8,5)^2 - 17 \cdot (-8,5) - 72 = -72,25 + 144,5 - 72 = 0,25;$

$y(-8) = -(-8)^2 - 17 \cdot (-8) - 72 = -64 + 136 - 72 = 0.$

x	-10	-9	$-8,5$	-8
y	-2	0	0,25	0

Графиком квадратичной функции $y = -x^2 - 11x - 24$ является парабола, ветви которой направлены вниз. Найдём вершину параболы:

$$x_B = -\frac{b}{2a} = -\frac{-11}{2 \cdot (-1)} = -5,5.$$

Для построения графика $y = -x^2 - 11x - 24$ при $x \geq -8$ возьмём значения $x = -8$,

Решение.

Для построения графика заданной функции воспользуемся тем, что:

$$|x+8| = \begin{cases} x+8 & \text{при} \quad x \geq -8, \\ -x-8 & \text{при} \quad x < -8. \end{cases}$$

Тогда заданная функция примет вид:

$$y = \begin{cases} 3(x+8) - x^2 - 14x - 48 & \text{при} \quad x \geq -8, \\ 3(-x-8) - x^2 - 14x - 48 & \text{при} \quad x < -8 \end{cases} \Leftrightarrow \quad y = \begin{cases} -x^2 - 11x - 24 & \text{при} \quad x \geq -8, \\ -x^2 - 17x - 72 & \text{при} \quad x < -8. \end{cases}$$

Таким образом, получена кусочная функция.

Графиком квадратичной функции $y = -x^2 - 17x - 72$ является парабола, ветви которой направлены вниз. Найдём вершину параболы:

$$x_B = -\frac{b}{2a} = -\frac{-17}{2 \cdot (-1)} = -8,5.$$

Для построения графика $y = -x^2 - 17x - 72$ при $x < -8$ возьмём значения $x = -10$, $x = -9$, $x = -8,5$ и $x = -8$:

$y(-10) = -(-10)^2 - 17 \cdot (-10) - 72 = -100 + 170 - 72 = -2;$

$y(-9) = -(-9)^2 - 17 \cdot (-9) - 72 = -81 + 153 - 72 = 0;$

$y(-8,5) = -(-8,5)^2 - 17 \cdot (-8,5) - 72 = -72,25 + 144,5 - 72 = 0,25;$

$y(-8) = -(-8)^2 - 17 \cdot (-8) - 72 = -64 + 136 - 72 = 0.$

x	-10	-9	$-8,5$	-8
y	-2	0	0,25	0

Графиком квадратичной функции $y = -x^2 - 11x - 24$ является парабола, ветви которой направлены вниз. Найдём вершину параболы:

$$x_B = -\frac{b}{2a} = -\frac{-11}{2 \cdot (-1)} = -5,5.$$

Для построения графика $y = -x^2 - 11x - 24$ при $x \geq -8$ возьмём значения $x = -8$,

© 2026 год. Вариант сгенерирован на сайте kim365.ru
Публикация в интернете или печатных изданиях без письменного согласия запрещена

$x = -7$, $x = -5,5$, $x = -4$ и $x = -3$:

$y(-8) = -(-8)^2 - 11 \cdot (-8) - 24 = -64 + 88 - 24 = 0;$

$y(-7) = -(-7)^2 - 11 \cdot (-7) - 24 = -49 + 77 - 24 = 4;$

$y(-5,5) = -(-5,5)^2 - 11 \cdot (-5,5) - 24 = -30,25 + 60,5 - 24 = 6,25;$

$y(-4) = -(-4)^2 - 11 \cdot (-4) - 24 = -16 + 44 - 24 = 4;$

$y(-3) = -(-3)^2 - 11 \cdot (-3) - 24 = -9 + 33 - 24 = 0.$

x	-8	-7	$-5,5$	-4	-3
y	0	4	6,25	4	0

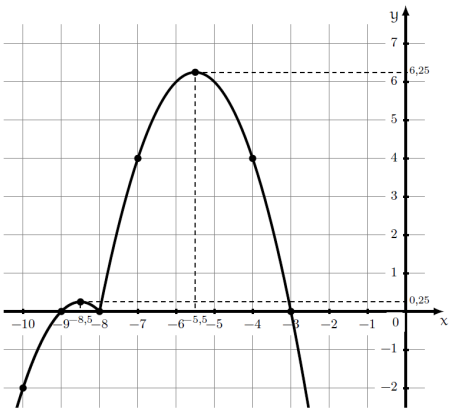

Рис. 1

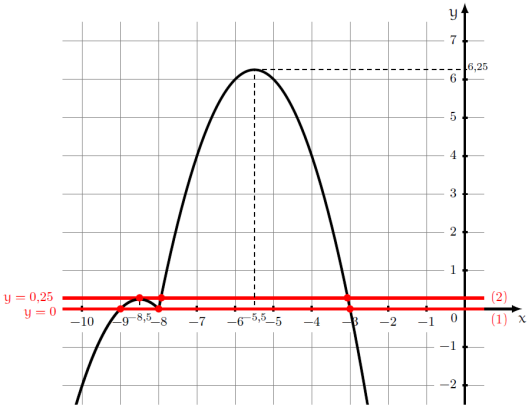

Рис. 2

Построим график (см. рис. 1). Точка $(-8; 0)$ является точкой стыка двух парабол.

Изобразим графики горизонтальных прямых $y = m$, при которых они будут иметь с графиком построенной функции ровно три общие точки (см. рис. 2). Точки пересечения прямых $y = m$ с графиком заданной функции отмечены красным цветом.

$x = -7$, $x = -5,5$, $x = -4$ и $x = -3$:

$y(-8) = -(-8)^2 - 11 \cdot (-8) - 24 = -64 + 88 - 24 = 0;$

$y(-7) = -(-7)^2 - 11 \cdot (-7) - 24 = -49 + 77 - 24 = 4;$

$y(-5,5) = -(-5,5)^2 - 11 \cdot (-5,5) - 24 = -30,25 + 60,5 - 24 = 6,25;$

$y(-4) = -(-4)^2 - 11 \cdot (-4) - 24 = -16 + 44 - 24 = 4;$

$y(-3) = -(-3)^2 - 11 \cdot (-3) - 24 = -9 + 33 - 24 = 0.$

x	-8	-7	$-5,5$	-4	-3
y	0	4	6,25	4	0

Рис. 1

Рис. 2

Построим график (см. рис. 1). Точка $(-8; 0)$ является точкой стыка двух парабол.

Изобразим графики горизонтальных прямых $y = m$, при которых они будут иметь с графиком построенной функции ровно три общие точки (см. рис. 2). Точки пересечения прямых $y = m$ с графиком заданной функции отмечены красным цветом.

© 2026 год. Вариант сгенерирован на сайте kim365.ru
Публикация в интернете или печатных изданиях без письменного согласия запрещена

Подходят:

случай (1): прямая $y = 0$, проходящая через точку стыка $(-8; 0)$ двух парабол;

случай (2): прямая $y = 0,25$, проходящая через вершину $(-8,5; 0,25)$ параболы, построенной при $x < -8$.

Следовательно, при $m = 0$ и $m = 0,25$ прямая $y = m$ имеет с графиком ровно три общие точки.

Подходят:

случай (1): прямая $y = 0$, проходящая через точку стыка $(-8; 0)$ двух парабол;

случай (2): прямая $y = 0,25$, проходящая через вершину $(-8,5; 0,25)$ параболы, построенной при $x < -8$.

Следовательно, при $m = 0$ и $m = 0,25$ прямая $y = m$ имеет с графиком ровно три общие точки.

Ответ: $0;\quad 0,25$.

© 2026 год. Вариант сгенерирован на сайте kim365.ru
Публикация в интернете или печатных изданиях без письменного согласия запрещена

слу
$y =$
чер
$(-8$
пар

слу
$y =$
про
вер
$(-8$
пар
пос
$x <$

Сле
при
$m =$
$y =$
гра
три

Отв

© 2026 год. Вариант сгенерирован на сайте kim365.ru
Публикация в интернете или печатных изданиях без письменного согласия запрещена

23

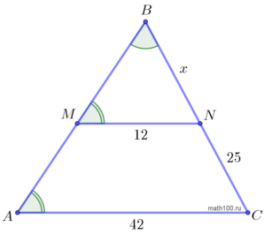

Пусть $BN = x$, тогда $BC = x + 25$.

Рассмотрим треугольники *MBN* и *ABC*: $\angle BMN = \angle BAC$ -как соответственные при параллельных прямых *MN* и *AC* и секущей *AB*, $\angle ABC$ -общий. Следовательно, эти треугольники подобны по двум углам и стороны этих треугольников пропорциональны:

$$\frac{MN}{AC} = \frac{BN}{BC} \quad \Leftrightarrow \quad \frac{12}{42} = \frac{x}{x+25} \quad \Leftrightarrow \quad \frac{2}{7} = \frac{x}{x+25} \quad \Leftrightarrow \quad 7x = 2(x+25) \quad \Leftrightarrow$$

$$\Leftrightarrow \quad 7x = 2x + 50 \quad \Leftrightarrow \quad 5x = 50 \quad \Leftrightarrow \quad x = 10.$$

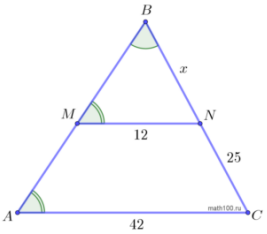

Пусть $BN = x$, тогда $BC = x + 25$.

Рассмотрим треугольники *MBN* и *ABC*: $\angle BMN = \angle BAC$ -как соответственные при параллельных прямых *MN* и *AC* и секущей *AB*, $\angle ABC$ -общий. Следовательно, эти треугольники подобны по двум углам и стороны этих треугольников пропорциональны:

$$\frac{MN}{AC} = \frac{BN}{BC} \quad \Leftrightarrow \quad \frac{12}{42} = \frac{x}{x+25} \quad \Leftrightarrow \quad \frac{2}{7} = \frac{x}{x+25} \quad \Leftrightarrow \quad 7x = 2(x+25) \quad \Leftrightarrow$$

$$\Leftrightarrow \quad 7x = 2x + 50 \quad \Leftrightarrow \quad 5x = 50 \quad \Leftrightarrow \quad x = 10.$$

Ответ: 10.

Пусть

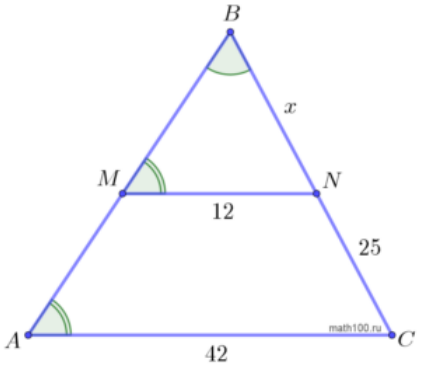

$BN = x$, тогда $BC = x + 25$.

Рассмотрим треугольники *MBN* и *ABC*: $\angle BMN = \angle BAC$-как соответственные при параллельных прямых *MN* и *AC* и секущей *AB*, $\angle ABC$-общий. Следовательно, эти треугольники подобны по двум углам и стороны этих треугольников пропорциональны:

$$\frac{MN}{AC} = \frac{BN}{BC} \quad \Leftrightarrow \quad \frac{12}{42} = \frac{x}{x+25} \quad \Leftrightarrow \quad \frac{2}{7} = \frac{x}{x+25} \quad \Leftrightarrow \quad 7x = 2(x+25) \quad \Leftrightarrow$$

$$\Leftrightarrow \quad 7x = 2x + 50 \quad \Leftrightarrow \quad 5x = 50 \quad \Leftrightarrow \quad x = 10.$$

Ответ: 10.

© 2026 год. Вариант сгенерирован на сайте kim365.ru
Публикация в интернете или печатных изданиях без письменного согласия запрещена

24

Решение.

Введем буквенные обозначения, как показано на рисунке ниже.

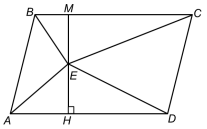

MH — высота, проведенная через точку *E* от верхнего основания параллелограмма к нижнему.

Площадь параллелограмма равна произведению его основания на высоту:

$$S_{ABCD} = AD \cdot MH.$$

Значит половина площади параллелограмма равна:

$$\frac{1}{2}S_{ABCD} = \frac{1}{2} \cdot AD \cdot MH.$$

Площадь треугольника равна половине произведения его основания на высоту.

Поскольку противоположные стороны параллелограмма равны, получаем, что площадь треугольника *BEC* равна:

$$S_{\triangle BEC} = \frac{1}{2} \cdot BC \cdot ME =$$

Решение.

Введем буквенные обозначения, как показано на рисунке ниже.

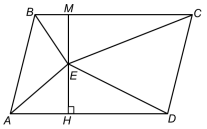

MH — высота, проведенная через точку *E* от верхнего основания параллелограмма к нижнему.

Площадь параллелограмма равна произведению его основания на высоту:

$$S_{ABCD} = AD \cdot MH.$$

Значит половина площади параллелограмма равна:

$$\frac{1}{2}S_{ABCD} = \frac{1}{2} \cdot AD \cdot MH.$$

Площадь треугольника равна половине произведения его основания на высоту.

Поскольку противоположные стороны параллелограмма равны, получаем, что площадь треугольника *BEC* равна:

$$S_{\triangle BEC} = \frac{1}{2} \cdot BC \cdot ME =$$

Решение.

Введем буквенные обозначения, как показано на рисунке ниже.

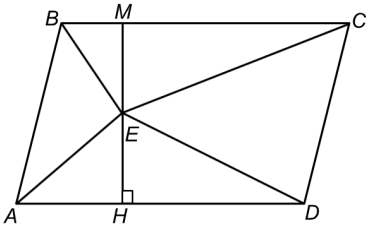

MH — высота, проведенная через точку *E* от верхнего основания параллелограмма к нижнему.

Площадь параллелограмма равна произведению его основания на высоту:

$$S_{ABCD} = AD \cdot MH.$$

Значит половина площади параллелограмма равна:

$$\frac{1}{2}S_{ABCD} = \frac{1}{2} \cdot AD \cdot MH.$$

Площадь треугольника равна половине произведения его основания на высоту.

Поскольку противоположные стороны параллелограмма равны, получаем, что площадь треугольника *BEC* равна:

$$S_{\triangle BEC} = \frac{1}{2} \cdot BC \cdot ME =$$

$$= \frac{1}{2} \cdot AD \cdot ME.$$

В свою очередь, площадь треугольника *AED* равна:

$$S_{\triangle AED} = \frac{1}{2} \cdot AD \cdot EH.$$

Так как *MH* = *ME* + *EH*, получаем, что сумма площадей треугольников *BEC* и *AED* равна:

$$\frac{1}{2} \cdot AD \cdot ME +$$

$$+ \frac{1}{2} \cdot AD \cdot EH =$$

$$= \frac{1}{2} \cdot AD \cdot (ME + EH) =$$

$$= \frac{1}{2} \cdot AD \cdot MH.$$

© 2026 год. Вариант сгенерирован на сайте kim365.ru
Публикация в интернете или печатных изданиях без письменного согласия запрещена

$$= \frac{1}{2} \cdot AD \cdot ME.$$

В свою очередь, площадь треугольника *AED* равна:

$$S_{\triangle AED} = \frac{1}{2} \cdot AD \cdot EH.$$

Так как *MH* = *ME* + *EH*, получаем, что сумма площадей треугольников *BEC* и *AED* равна:

$$\frac{1}{2} \cdot AD \cdot ME +$$

$$+ \frac{1}{2} \cdot AD \cdot EH =$$

$$= \frac{1}{2} \cdot AD \cdot (ME + EH) =$$

$$= \frac{1}{2} \cdot AD \cdot MH.$$

Следовательно, сумма площадей треугольников *BEC* и *AED* равна половине площади параллелограмма.

$$= \frac{1}{2} \cdot AD \cdot ME.$$

В свою очередь, площадь треугольника *AED* равна:

$$S_{\triangle AED} = \frac{1}{2} \cdot AD \cdot EH.$$

Так как *MH* = *ME* + *EH*, получаем, что сумма площадей треугольников *BEC* и *AED* равна:

$$\frac{1}{2} \cdot AD \cdot ME +$$

$$+ \frac{1}{2} \cdot AD \cdot EH =$$

$$= \frac{1}{2} \cdot AD \cdot (ME + EH) =$$

$$= \frac{1}{2} \cdot AD \cdot MH.$$

Следовательно, сумма площадей треугольников *BEC* и *AED* равна половине площади параллелограмма.

Следовательно, сумма площадей треугольников *BEC* и *AED* равна половине площади параллелограмма.

© 2026 год. Вариант сгенерирован на сайте kim365.ru
Публикация в интернете или печатных изданиях без письменного согласия запрещена

25

Решение.
Введем буквенные обозначения, как показано на рисунке ниже.

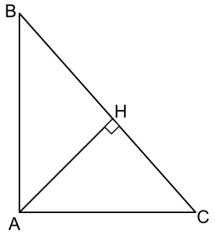

Пусть катет *AC* равен 24. Тогда по теореме Пифагора длина катета *AB* равна:

$$AB = \sqrt{BC^2 - AC^2},$$

$$AB = \sqrt{51^2 - 24^2} =$$

$$= \sqrt{2025} = 45.$$

Площадь прямоугольного треугольника равна половине произведения его катетов:

$$S_{\triangle ABC} = \frac{1}{2} \cdot BA \cdot AC =$$

$$= \frac{1}{2} \cdot 24 \cdot 45 = 540.$$

Площадь треугольника равна половине произведения его основания на высоту.

Если сторону *BC* принять за основание, тогда получим:

$$S_{\triangle ABC} = \frac{1}{2} \cdot AH \cdot BC.$$

Тогда

$$AH = \frac{2 \cdot S_{\triangle ABC}}{BC} =$$

$$= \frac{2 \cdot 540}{51} = \frac{2 \cdot 540}{17 \cdot 3} =$$

$$= \frac{360}{17} = 21\frac{3}{17}.$$

Решение.
Введем буквенные обозначения, как показано на рисунке ниже.

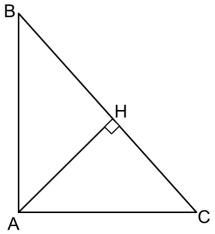

Пусть катет *AC* равен 24. Тогда по теореме Пифагора длина катета *AB* равна:

$$AB = \sqrt{BC^2 - AC^2},$$

$$AB = \sqrt{51^2 - 24^2} =$$

$$= \sqrt{2025} = 45.$$

Площадь прямоугольного треугольника равна половине произведения его катетов:

$$S_{\triangle ABC} = \frac{1}{2} \cdot BA \cdot AC =$$

$$= \frac{1}{2} \cdot 24 \cdot 45 = 540.$$

Площадь треугольника равна половине произведения его основания на высоту.

Если сторону *BC* принять за основание, тогда получим:

$$S_{\triangle ABC} = \frac{1}{2} \cdot AH \cdot BC.$$

Тогда

$$AH = \frac{2 \cdot S_{\triangle ABC}}{BC} =$$

$$= \frac{2 \cdot 540}{51} = \frac{2 \cdot 540}{17 \cdot 3} =$$

$$= \frac{360}{17} = 21\frac{3}{17}.$$

Решение.
Введем буквенные обозначения, как показано на рисунке ниже.

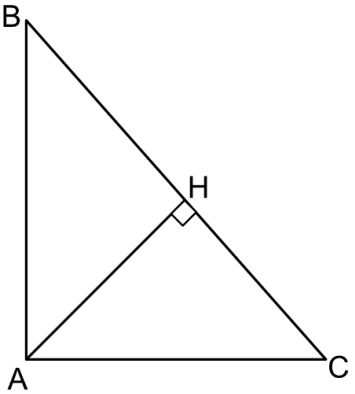

Пусть катет *AC* равен 24. Тогда по теореме Пифагора длина катета *AB* равна:

$$AB = \sqrt{BC^2 - AC^2},$$

$$AB = \sqrt{51^2 - 24^2} =$$

$$= \sqrt{2025} = 45.$$

Площадь прямоугольного треугольника равна половине произведения его катетов:

$$S_{\triangle ABC} = \frac{1}{2} \cdot BA \cdot AC =$$

$$= \frac{1}{2} \cdot 24 \cdot 45 = 540.$$

Площадь треугольника равна половине произведения его основания на высоту.

Если сторону *BC* принять за основание, тогда получим:

$$S_{\triangle ABC} = \frac{1}{2} \cdot AH \cdot BC.$$

Тогда

$$AH = \frac{2 \cdot S_{\triangle ABC}}{BC} =$$

$$= \frac{2 \cdot 540}{51} = \frac{2 \cdot 540}{17 \cdot 3} =$$

$$= \frac{360}{17} = 21\frac{3}{17}.$$

Следовательно, высота, проведённая к гипотенузе, равна $21\frac{3}{17}$.
Ответ: $21\frac{3}{17}$

© 2026 год. Вариант сгенерирован на сайте kim365.ru
Публикация в интернете или печатных изданиях без письменного согласия запрещена

Следовательно, высота, проведённая к гипотенузе, равна $21\frac{3}{17}$.
Ответ: $21\frac{3}{17}$

Следовательно, высота, проведённая к гипотенузе, равна $21\frac{3}{17}$.
Ответ: $21\frac{3}{17}$

© 2026 год. Вариант сгенерирован на сайте kim365.ru
Публикация в интернете или печатных изданиях без письменного согласия запрещена