Тренировочная работа в формате ОГЭ

по МАТЕМАТИКЕ

Дата: __ _____ 2025 года

Вариант _____

Выполнена: ФИО_____ класс _____

Инструкция по выполнению работы

Работа состоит из двух частей, включающих в себя 25 заданий. Часть 1 содержит 19 заданий, часть 2 содержит 6 задананий с развёрнутым ответом.

На выполнение работы по математике отводится 3 часа 55 минут (235 минут).

Ответы к заданиям 7 и 13 запишите в виде одной цифры, которая соответствует номеру правильного ответа.

Для остальных заданий части 1 ответом является число или последовательность цифр. Если получилась обыкновенная дробь, ответ запишите в виде десятичной.

Решения заданий части 2 и ответы к ним запишите на отдельном листе бумаги. Задания можно выполнять в любом порядке. Текст задания переписывать не надо, необходимо только указать его номер.

Сначала выполняйте задания части 1. Начать советуем с тех заданий, которые вызывают у Вас меньше затруднений, затем переходите к другим заданиям. Для экономии времени пропускайте задание, которое не удаётся выполнить сразу, и переходите к следующему. Если у Вас останется время, Вы сможете вернуться к пропущенным заданиям.

При выполнении части 1 все необходимые вычисления, преобразования выполняйте в черновике. **Записи в черновике, а также в тексте контрольных измерительных материалов не учитываются при оценивании работы.**

Если задание содержит рисунок, то на нём непосредственно в тексте работы можно выполнять необходимые Вам построения. Рекомендуем внимательно читать условие и проводить проверку полученного ответа.

При выполнении работы Вы можете воспользоваться справочными материалами, выданными вместе с вариантом КИМ, и линейкой.

Баллы, полученные Вами за выполненные задания, суммируются.

Постарайтесь выполнить как можно больше заданий и набрать наибольшее количество баллов.

После завершения работы проверьте, чтобы ответ на каждое задание был записан под правильным номером.

Желаем успеха!

© 2025 год. Вариант сгенерирован на сайте kim365.ru
Публикация в интернете или печатных изданиях без письменного согласия запрещена

На рисунке изображён план двухкомнатной квартиры в многоэтажном жилом доме. Сторона одной клетки на плане соответствует 0,4 м, а условные обозначения двери и окна приведены в правой части рисунка.

Вход в квартиру находится в коридоре. Слева от входа в квартиру находится санузел, а в противоположном конце коридора — дверь в кладовую. Рядом с кладовой находится спальня, из которой можно пройти на одну из застеклённых лоджий. Самое большое по площади помещение — гостиная, откуда можно п опасть в коридор и на кухню. Из кухни также можно попасть на застеклённую лоджию.

1 Для объектов, указанных в таблице, определите, какими цифрами они обозначены на плане. Заполните таблицу, в бланк перенесите последовательность четырёх цифр без пробелов, запятых и других дополнительных символов.

Объекты	коридор	кладовая	спальня	гостиная
Цифры				

Ответ: _____

2 Плитка для пола размером 40 см на 40 см продаётся в упаковках по 12 штук. Сколько упаковок плитки понадобилось, чтобы выложить пол на обеих лоджиях?

Ответ: _____

3 Найдите площадь спальни. Ответ дайте в квадратных метрах.

Ответ: _____

4 На сколько процентов площадь кухни больше площади лоджии, примыкающей к кухне?

Ответ: _____

© 2025 год. Вариант сгенерирован на сайте kim365.ru
Публикация в интернете или печатных изданиях без письменного согласия запрещена

5 В квартире планируется установить стиральную машину. Характеристики стиральных машин, условия подключения и доставки приведены в таблице. Планируется купить стиральную машину с вертикальной загрузкой, не превосходящую 85 см по высоте.

Модель	Вместимость барабана (кг)	Тип загрузки	Стоимость (руб.)	Стоимость подключения (руб.)	Стоимость доставки (% от стоимости машины)	Габариты (высота × ширина × глубина, см)
А	7	верт.	28 000	1700	бесплатно	$85 \times 60 \times 45$
Б	5	фронт.	24 000	4500	10	$85 \times 60 \times 40$
В	5	фронт.	25 000	5000	10	$85 \times 60 \times 40$
Г	6,5	фронт.	24 000	4500	10	$85 \times 60 \times 44$
Д	6	фронт.	28 000	1700	бесплатно	$85 \times 60 \times 45$
Е	6	верт.	27 600	2300	бесплатно	$89 \times 60 \times 40$
Ж	6	верт.	27 585	1900	10	$89 \times 60 \times 40$
З	6	фронт.	20 000	6300	15	$85 \times 60 \times 42$
И	5	фронт.	27 000	1800	бесплатно	$85 \times 60 \times 40$
К	5	верт.	27 000	1800	бесплатно	$85 \times 60 \times 40$

Сколько рублей будет стоить наиболее дешёвый подходящий вариант вместе с подключением и доставкой?

Ответ: _____

6 Найдите значение выражения $7{,}7 \cdot 5{,}3$.

Ответ: _____

7 На координатной прямой отмечены числа p, q и r.



Какая из разностей $q - p$, $r - q$, $p - r$ отрицательна?

1) $q - p$
2) $r - q$
3) $p - r$
4) ни одна из них

Ответ: ☐

© 2025 год. Вариант сгенерирован на сайте kim365.ru
Публикация в интернете или печатных изданиях без письменного согласия запрещена

8 Найдите значение выражения $\sqrt{5^6}$.

Ответ: _____

9 Найдите корень уравнения $5(x+9)=-8$.

Ответ: _____

10 Вероятность того, что новая шариковая ручка пишет плохо (или не пишет), равна 0,06. Покупатель в магазине выбирает одну шариковую ручку. Найдите вероятность того, что эта ручка пишет хорошо.

Ответ: _____

11 На рисунках изображены графики функций вида $y=ax^2+bx+c$. Установите соответствие между знаками коэффициентов a и c и графиками функций.

КОЭФФИЦИЕНТЫ

А) $a>0, c>0$ **Б)** $a<0, c>0$ **В)** $a>0, c<0$

ГРАФИКИ

1)

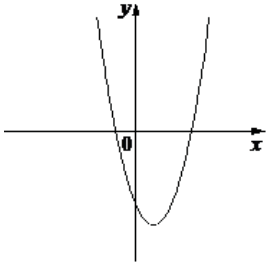

2)

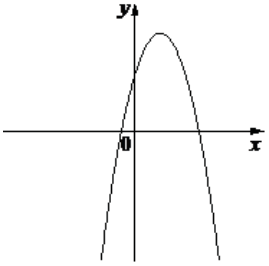

3)

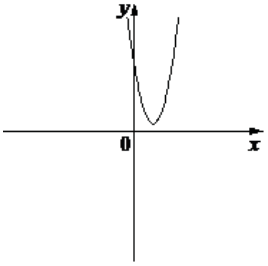

В таблице под каждой буквой укажите соответствующий номер.

Ответ:

А	Б	В

12 Кинетическая энергия тела массой m кг, двигающегося со скоростью $v\,\frac{\text{м}}{\text{с}}$, вычисляется по формуле

$$E=\frac{mv^2}{2}$$

и измеряется в джоулях (Дж). Известно, что автомобиль массой 1600 кг обладает кинетической энергией 180 тысяч джоулей. Найдите скорость этого автомобиля в метрах в секунду.

Ответ: _____

© 2025 год. Вариант сгенерирован на сайте kim365.ru
Публикация в интернете или печатных изданиях без письменного согласия запрещена

13 Укажите неравенство, решение которого изображено на рисунке.



1) $x^2 - 7x < 0$

2) $x^2 - 49 > 0$

3) $x^2 - 7x > 0$

4) $x^2 - 49 < 0$

Ответ: ☐

14 При проведении опыта вещество равномерно охлаждали в течение 10 минут. При этом каждую минуту его температура уменьшалась на $9\,^\circ\mathrm{C}$. Найдите температуру вещества в градусах Цельсия через 6 минут после начала опыта, если начальная температура вещества составляла $-6\,^\circ\mathrm{C}$.

Ответ: _____

15 Сторона равностороннего треугольника равна $10\sqrt{3}$. Найдите медиану этого треугольника.

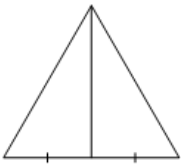

Ответ: _____

16 Сторона квадрата равна $24\sqrt{2}$. Найдите радиус окружности, описанной около этого квадрата.

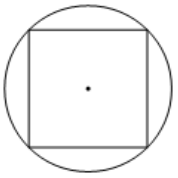

Ответ: _____

17 В ромбе $ABCD$ угол ABC равен 82°. Найдите угол ACD. Ответ дайте в градусах.

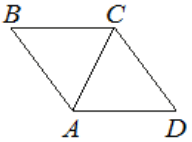

Ответ: _____

18 На клетчатой бумаге изображён треугольник ABC. Во сколько раз отрезок BM короче отрезка CM?

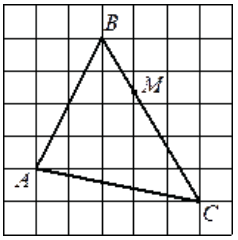

Ответ: _____

© 2025 год. Вариант сгенерирован на сайте kim365.ru
Публикация в интернете или печатных изданиях без письменного согласия запрещена

19 Какое из следующих утверждений является истинным высказыванием?

1) Основания любой трапеции параллельны.

2) Тангенс любого острого угла меньше единицы.

3) Сумма углов любого треугольника равна 360 градусам.

В ответ запишите номер истинного высказывания.

Ответ: _____

© 2025 год. Вариант сгенерирован на сайте kim365.ru
Публикация в интернете или печатных изданиях без письменного согласия запрещена

Часть 2

При выполнении заданий 20-25 используйте отдельный лист бумаги. Сначала укажите номер задания, а затем запишите его решение и ответ. Пишите чётко и разборчиво.

20 Найдите значение выражения $11a - 7b + 21$, если $\dfrac{4a - 5b + 6}{5a - 4b + 6} = 3$.

Ответ: _____

21 Два автомобиля одновременно отправляются в 540-километровый пробег. Первый едет со скоростью на 30 км/ч большей, чем второй, и прибывает к финишу на 3 ч раньше второго. Найдите скорость первого автомобиля.

Ответ: _____

22 Постройте график функции $y = \dfrac{\left(x^2 + 6,25\right)(x - 1)}{1 - x}$.

Определите, при каких значениях k прямая $y = k\,x$ имеет с графиком ровно одну общую точку.

Ответ: _____

23 Высота *AH* ромба *ABCD* делит сторону *CD* на отрезки *DH* = 21 и *CH* = 8. Найдите высоту ромба.

Ответ: _____

24 Сторона *BC* параллелограмма *ABCD* вдвое больше стороны *CD*. Точка *K* — середина стороны *BC*. Докажите, что *DK* — биссектриса угла *ADC*.

Ответ: _____

25 Окружность с центром на стороне *AC* треугольника *ABC* проходит через вершину *C* и касается прямой *AB* в точке *B*. Найдите *AC*, если диаметр окружности равен 16, а *AB* = 15.

Ответ: _____

© 2025 год. Вариант сгенерирован на сайте kim365.ru
Публикация в интернете или печатных изданиях без письменного согласия запрещена

© 2025 год. Вариант сгенерирован на сайте kim365.ru
Публикация в интернете или печатных изданиях без письменного согласия запрещена