Тренировочная работа в формате ОГЭ

по МАТЕМАТИКЕ

Дата: __ _____ 2025 года

Вариант _____

Выполнена: ФИО_____ класс _____

Инструкция по выполнению работы

Работа состоит из двух частей, включающих в себя 25 заданий. Часть 1 содержит 19 заданий, часть 2 содержит 6 задананий с развёрнутым ответом.

На выполнение работы по математике отводится 3 часа 55 минут (235 минут).

Ответы к заданиям 7 и 13 запишите в виде одной цифры, которая соответствует номеру правильного ответа.

Для остальных заданий части 1 ответом является число или последовательность цифр. Если получилась обыкновенная дробь, ответ запишите в виде десятичной.

Решения заданий части 2 и ответы к ним запишите на отдельном листе бумаги. Задания можно выполнять в любом порядке. Текст задания переписывать не надо, необходимо только указать его номер.

Сначала выполняйте задания части 1. Начать советуем с тех заданий, которые вызывают у Вас меньше затруднений, затем переходите к другим заданиям. Для экономии времени пропускайте задание, которое не удаётся выполнить сразу, и переходите к следующему. Если у Вас останется время, Вы сможете вернуться к пропущенным заданиям.

При выполнении части 1 все необходимые вычисления, преобразования выполняйте в черновике. **Записи в черновике, а также в тексте контрольных измерительных материалов не учитываются при оценивании работы.**

Если задание содержит рисунок, то на нём непосредственно в тексте работы можно выполнять необходимые Вам построения. Рекомендуем внимательно читать условие и проводить проверку полученного ответа.

При выполнении работы Вы можете воспользоваться справочными материалами, выданными вместе с вариантом КИМ, и линейкой.

Баллы, полученные Вами за выполненные задания, суммируются.

Постарайтесь выполнить как можно больше заданий и набрать наибольшее количество баллов.

После завершения работы проверьте, чтобы ответ на каждое задание был записан под правильным номером.

Желаем успеха!

© 2025 год. Вариант сгенерирован на сайте kim365.ru
Публикация в интернете или печатных изданиях без письменного согласия запрещена

Часть 1

Ответами к заданиям 1-19 являются число или последовательность цифр.

Прочитайте внимательно текст и выполните задания 1-5.

Никита и папа летом живут в деревне Лягушкино. В субботу они собираются съездить на велосипедах в село Вятское в спортивный магазин. Из деревни Лягушкино в село Вятское можно проехать по прямой лесной дорожке. Есть более длинный путь: по прямолинейному шоссе через деревню Куровка до деревни Марусино, где нужно повернуть под прямым углом налево на другое шоссе, ведущее в село Вятское. Есть и третий маршрут: в деревне Куровка можно свернуть на прямую тропинку в село Вятское, которая идёт мимо пруда.

Лесная дорожка и тропинка образуют с шоссе прямоугольные треугольники.

По шоссе Никита с папой едут со скоростью 25 км/ч, а по лесной дорожке и тропинке — со скоростью 15 км/ч. На плане изображено взаимное расположение населённых пунктов, длина стороны каждой клетки равна 1 км.

1 Пользуясь описанием, определите, какими цифрами на плане обозначены населённые пункты.

Заполните таблицу, в бланк ответов перенесите последовательность трёх цифр без пробелов, запятых и других дополнительных символов.

Насел. пункты	д. Лягушкино	с. Вятское	д. Куровка
Цифры			

Ответ: _____

2 Сколько километров проедут Никита с папой от деревни Лягушкино до села Вятское, если они поедут по шоссе через деревню Марусино?

Ответ: _____

3 Найдите расстояние от деревни Лягушкино до села Вятское по прямой. Ответ дайте в километрах.

Ответ: _____

© 2025 год. Вариант сгенерирован на сайте kim365.ru
Публикация в интернете или печатных изданиях без письменного согласия запрещена

4 Сколько минут затратят на дорогу из деревни Лягушкино в село Вятское Никита с папой, если они поедут сначала по шоссе, а затем свернут в деревне Куровка на прямую тропинку, которая проходит мимо пруда?

Ответ: _____

5 В таблице указана стоимость (в рублях) некоторых продуктов в четырёх магазинах, расположенных в деревне Лягушкино, селе Вятское, деревне Куровка и деревне Марусино.

Наименование продукта	д. Лягушкино	с. Вятское	д. Куровка	д. Марусино
Молоко (1 л)	32	38	31	44
Хлеб (1 батон)	26	28	35	25
Сыр «Российский» (1 кг)	220	260	230	240
Говядина (1 кг)	360	350	330	400
Картофель (1 кг)	16	15	22	17

Никита с папой хотят купить 3 батона хлеба, 2 кг говядины и 3 кг картофеля. В каком магазине такой набор продуктов будет стоить дешевле всего? В ответ запишите стоимость данного набора в этом магазине.

Ответ: _____

6 Найдите значение выражения $7{,}7 \cdot 5{,}3$.

Ответ: _____

7 На координатной прямой отмечены числа p, q и r.

Какая из разностей $q-p$, $r-q$, $p-r$ отрицательна?

1) $q-p$
2) $r-q$
3) $p-r$
4) ни одна из них

Ответ: ☐

8 Найдите значение выражения $\sqrt{5^6}$.

Ответ: _____

9 Найдите корень уравнения $5\,(x+9)=-8$.

Ответ: _____

© 2025 год. Вариант сгенерирован на сайте kim365.ru
Публикация в интернете или печатных изданиях без письменного согласия запрещена

10 Вероятность того, что новая шариковая ручка пишет плохо (или не пишет), равна 0,06. Покупатель в магазине выбирает одну шариковую ручку. Найдите вероятность того, что эта ручка пишет хорошо.

Ответ: _____

11 На рисунках изображены графики функций вида $y = ax^2 + bx + c$. Установите соответствие между знаками коэффициентов a и c и графиками функций.

КОЭФФИЦИЕНТЫ

А) $a > 0, c > 0$ **Б)** $a < 0, c > 0$ **В)** $a > 0, c < 0$

ГРАФИКИ

1)

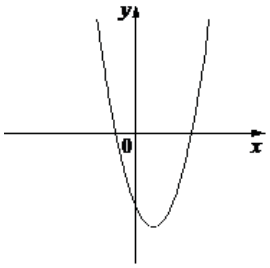

2)

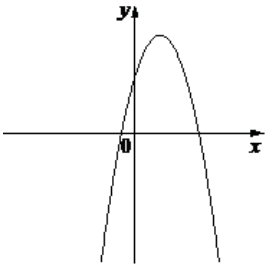

3)

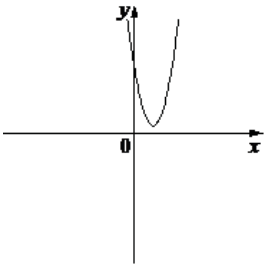

В таблице под каждой буквой укажите соответствующий номер.

Ответ:

А	Б	В

12 Кинетическая энергия тела массой m кг, двигающегося со скоростью $v\ \frac{\text{м}}{\text{с}}$, вычисляется по формуле

$$E = \frac{mv^2}{2}$$

и измеряется в джоулях (Дж). Известно, что автомобиль массой 1600 кг обладает кинетической энергией 180 тысяч джоулей. Найдите скорость этого автомобиля в метрах в секунду.

Ответ: _____

13 Укажите неравенство, решение которого изображено на рисунке.



1) $x^2 - 7x < 0$

2) $x^2 - 49 > 0$

3) $x^2 - 7x > 0$

4) $x^2 - 49 < 0$

Ответ: ☐

© 2025 год. Вариант сгенерирован на сайте kim365.ru
Публикация в интернете или печатных изданиях без письменного согласия запрещена

14 При проведении опыта вещество равномерно охлаждали в течение 10 минут. При этом каждую минуту его температура уменьшалась на $9\,^\circ\mathrm{C}$. Найдите температуру вещества в градусах Цельсия через 6 минут после начала опыта, если начальная температура вещества составляла $-6\,^\circ\mathrm{C}$.

Ответ: _____

15 Сторона равностороннего треугольника равна $10\sqrt{3}$. Найдите медиану этого треугольника.

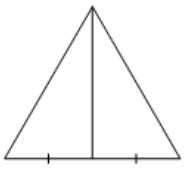

Ответ: _____

16 Сторона квадрата равна $24\sqrt{2}$. Найдите радиус окружности, описанной около этого квадрата.

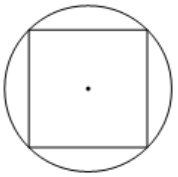

Ответ: _____

17 В ромбе $ABCD$ угол ABC равен 82°. Найдите угол ACD. Ответ дайте в градусах.

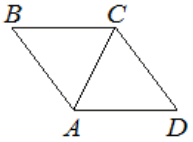

Ответ: _____

18 На клетчатой бумаге изображён треугольник ABC. Во сколько раз отрезок BM короче отрезка CM?

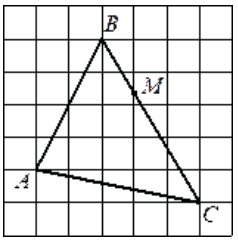

Ответ: _____

19 Какое из следующих утверждений является истинным высказыванием?

1) Основания любой трапеции параллельны.
2) Тангенс любого острого угла меньше единицы.
3) Сумма углов любого треугольника равна 360 градусам.

В ответ запишите номер истинного высказывания.

Ответ: _____

© 2025 год. Вариант сгенерирован на сайте kim365.ru
Публикация в интернете или печатных изданиях без письменного согласия запрещена

Часть 2

При выполнении заданий 20-25 используйте отдельный лист бумаги. Сначала укажите номер задания, а затем запишите его решение и ответ. Пишите чётко и разборчиво.

20 Найдите значение выражения $11a - 7b + 21$, если $\dfrac{4a - 5b + 6}{5a - 4b + 6} = 3$.

Ответ: _____

21 Два автомобиля одновременно отправляются в 540-километровый пробег. Первый едет со скоростью на 30 км/ч большей, чем второй, и прибывает к финишу на 3 ч раньше второго. Найдите скорость первого автомобиля.

Ответ: _____

22 Постройте график функции $y = \dfrac{\left(x^2 + 6,25\right)(x - 1)}{1 - x}$.

Определите, при каких значениях k прямая $y = k\,x$ имеет с графиком ровно одну общую точку.

Ответ: _____

23 Высота *AH* ромба *ABCD* делит сторону *CD* на отрезки *DH* = 21 и *CH* = 8. Найдите высоту ромба.

Ответ: _____

24 Сторона *BC* параллелограмма *ABCD* вдвое больше стороны *CD*. Точка *K* — середина стороны *BC*. Докажите, что *DK* — биссектриса угла *ADC*.

Ответ: _____

25 Окружность с центром на стороне *AC* треугольника *ABC* проходит через вершину *C* и касается прямой *AB* в точке *B*. Найдите *AC*, если диаметр окружности равен 16, а *AB* = 15.

Ответ: _____

© 2025 год. Вариант сгенерирован на сайте kim365.ru
Публикация в интернете или печатных изданиях без письменного согласия запрещена

© 2025 год. Вариант сгенерирован на сайте kim365.ru
Публикация в интернете или печатных изданиях без письменного согласия запрещена