Тренировочная работа в формате ЕГЭ
по МАТЕМАТИКЕ

Базовый уровень

Дата: __ _____ 2026 года

Вариант _____

Выполнена: ФИО_____ класс _____

Инструкция по выполнению работы

Работа по математике состоит из двух частей, включающих в себя 19 заданий. Часть 1 содержит 12 заданий с кратким ответом базового и повышенного уровней сложности. Часть 2 содержит 7 заданий с развёрнутым ответом повышенного и высокого уровней сложности.

На выполнение экзаменационной работы по математике отводится 3 часа 55 минут (235 минут).

Ответы к заданиям 1–12 записываются в виде целого числа или конечной десятичной дроби.

При выполнении заданий 13–19 требуется записать полное решение на отдельном листе бумаги.

При выполнении заданий можно пользоваться черновиком. **Записи в черновике, а также в тексте контрольных измерительных материалов не учитываются при оценивании работы.**

Баллы, полученные Вами за выполненные задания, суммируются. Постарайтесь выполнить как можно больше заданий и набрать наибольшее количество баллов.

После завершения работы проверьте, чтобы ответ на каждое задание был записан под правильным номером.

Желаем успеха!

© 2026 год. Вариант сгенерирован на сайте kim365.ru
Публикация в интернете или печатных изданиях без письменного согласия запрещена

Ответом к каждому заданию является конечная десятичная дробь, целое число или последовательность цифр. Запишите ответы к заданиям в поле ответа в тексте работы.

1 На автозаправке клиент отдал кассиру 1000 рублей и попросил залить бензин до полного бака. Цена бензина 32 рубля за литр. Клиент получил 72 рубля сдачи. Сколько литров бензина было залито в бак?

Ответ: _____

2 Установите соответствие между величинами и их возможными значениями: к каждому элементу первого столбца подберите соответствующий элемент из второго столбца.

ВЕЛИЧИНЫ	**ЗНАЧЕНИЯ**
А) объём бутылки газировки	**1)** 2 л
Б) объём багажника автомобиля	**2)** 200 л
В) объём грузового отсека транспортного самолёта	**3)** 555 000 км ^{3}
	4) 400 м ^{3}
Г) объём воды в Чёрном море	

В таблице под каждой буквой, соответствующей величине, укажите номер её возможного значения.

Ответ:

А	**Б**	**В**	**Г**

3 На рисунке жирными точками показана цена палладия, установленная Центробанком РФ во все рабочие дни в октябре 2010 года. По горизонтали указываются числа месяца, по вертикали – цена палладия в рублях за грамм. Для наглядности жирные точки на рисунке соединены линией. Определите по рисунку наибольшую цену палладия в период с 9 по 23 октября. Ответ дайте в рублях за грамм.

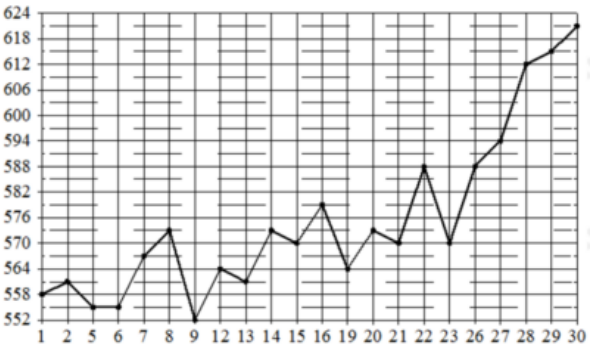

Ответ: _____

© 2026 год. Вариант сгенерирован на сайте kim365.ru
Публикация в интернете или печатных изданиях без письменного согласия запрещена

4 Закон Гука можно записать в виде $F = kx$, где F — сила (в ньютонах), с которой растягивают пружину, x — абсолютное удлинение пружины (в метрах), а k — коэффициент упругости (в Н/м). Пользуясь этой формулой, найдите x (в метрах), если $F = 51$ Н и $k = 3$ Н/м.

Ответ: _____

5 Научная конференция проводится в 4 дня. Всего запланировано 50 докладов: первые два дня — по 12 докладов, остальные доклады распределены поровну между третьим и четвёртым днями. На конференции планируется доклад профессора Ф. Порядок докладов определяется случайным образом. Какова вероятность того, что доклад профессора Ф. окажется запланированным на последний день конференции?

Ответ: _____

6 Для обслуживания международного семинара необходимо собрать группу переводчиков. Сведения о кандидатах представлены в таблице.

Номер переводчика	Языки	Стоимость услуг (руб. в день)
1	Английский	2000
2	Французский, испанский	5950
3	Французский	3050
4	Немецкий	4000
5	Испанский, немецкий	6800
6	Французский, английский	6100

Пользуясь таблицей, соберите хотя бы одну группу, в которой переводчики вместе владеют всеми четырьмя языками: английским, немецким, испанским и французским, а суммарная стоимость их услуг не превышает 12 000 рублей в день.
В ответе укажите какой-нибудь один набор номеров переводчиков без пробелов, запятых и других дополнительных символов.

Ответ: _____

© 2026 год. Вариант сгенерирован на сайте kim365.ru
Публикация в интернете или печатных изданиях без письменного согласия запрещена

7 Установите соответствие между графиками функций и характеристиками этих функций на отрезке $[-1;\ 1]$.

ГРАФИКИ

А)

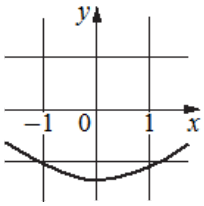

В)

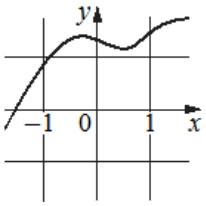

Б)

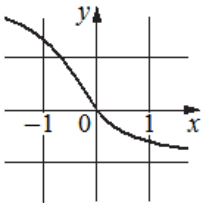

Г)

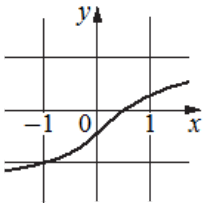

ХАРАКТЕРИСТИКИ

1) функция принимает отрицательное значение в каждой точке отрезка $[-1;\ 1]$

2) функция возрастает на отрезке $[-1;\ 1]$

3) функция принимает положительное значение в каждой точке отрезка $[-1;\ 1]$

4) функция убывает на отрезке $[-1;\ 1]$

В таблице под каждой буквой укажите соответствующий номер.

Ответ:

А	Б	В	Г

8 Виктор старше Дениса, но младше Егора. Андрей не старше Виктора. Выберите все утверждения, которые верны при указанных условиях.

1) Егор самый старший из указанных четырёх человек.
2) Андрей и Егор одного возраста.
3) Виктор и Денис одного возраста.
4) Денис младше Егора.

В ответе запишите номера выбранных утверждений без пробелов, запятых и других дополнительных символов.

Ответ: _____

9 План местности разбит на клетки. Каждая клетка обозначает квадрат 1 м × 1 м. Найдите площадь участка, выделенного на плане. Ответ дайте в квадратных метрах.

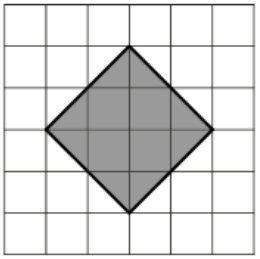

Ответ: _____

© 2026 год. Вариант сгенерирован на сайте kim365.ru
Публикация в интернете или печатных изданиях без письменного согласия запрещена

10 На плане указано, что прямоугольная комната имеет площадь 20,7 кв. м. Точные измерения показали, что ширина комнаты равна 4 м, а длина 5,2 м. На сколько квадратных метров площадь комнаты отличается от площади, указанной на плане?

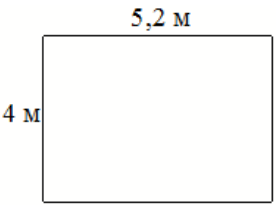

Ответ: _____

11 Однородный шар диаметром 5 см весит 500 граммов. Сколько граммов весит шар диаметром 3 см, изготовленный из того же материала?

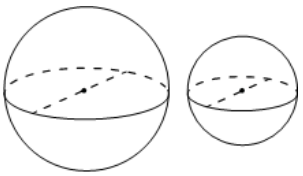

Ответ: _____

12 Четырёхугольник $ABCD$ вписан в окружность. Угол ABC равен 134°, угол CAD равен 81°. Найдите угол ABD. Ответ дайте в градусах.

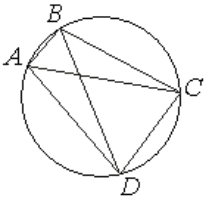

Ответ: _____

13 Даны два шара с радиусами 5 и 1. Во сколько раз площадь поверхности большего шара больше площади поверхности меньшего?

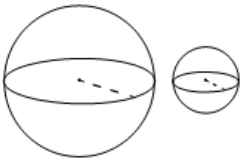

Ответ: _____

14 Найдите значение выражения $\frac{5}{2} : \frac{4}{5} - \frac{1}{8}$.

Ответ: _____

15 В школе французский язык изучают 153 учащихся, что составляет 30% от числа всех учащихся школы. Сколько учащихся в школе?

Ответ: _____

16 Найдите значение выражения $\frac{39}{\left(2\sqrt{13}\right)^2}$.

Ответ: _____

© 2026 год. Вариант сгенерирован на сайте kim365.ru
Публикация в интернете или печатных изданиях без письменного согласия запрещена

17 Найдите корень уравнения $\log_{\frac{2}{3}}(2x+9)=-1$.

Ответ: _____

18 На координатной прямой отмечены точки A, B, C и D.

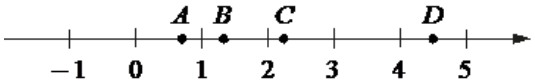

Число m равно $-\sqrt{2{,}2}$.

Каждой точке соответствует одно из чисел в правом столбце. Установите соответствие между указанными точками и числами.

ТОЧКИ	**ЧИСЛА**
A	*1)* $3-m$
B	*2)* $-\dfrac{2}{m}$
C	*3)* $\sqrt{m+2}$
D	*4)* m^2

В таблице для каждой точки укажите номер соответствующего числа.

Ответ:

A	*B*	*C*	*D*

19 Найдите четырёхзначное число, кратное 44, любые две соседние цифры которого отличаются на 1. В ответе укажите какое-нибудь одно такое число.

Ответ: _____

20 Дорога между пунктами А и В состоит из подъёма и спуска, а её длина равна 30 км. Путь из А в В занял у туриста 11 часов, из которых 8 часов ушло на спуск. Найдите скорость туриста на спуске, если она больше скорости на подъёме на 1 км/ч. Ответ дайте в км/ч.

Ответ: _____

21 Клетки таблицы 7×5 раскрашены в чёрный и белый цвета так, что получилось 27 пар соседних клеток разного цвета и 21 пара соседних клеток чёрного цвета. (Клетки считаются соседними, если у них есть общая сторона.) Сколько получилось пар соседних клеток белого цвета?

Ответ: _____

© 2026 год. Вариант сгенерирован на сайте kim365.ru
Публикация в интернете или печатных изданиях без письменного согласия запрещена