Тренировочная работа в формате ЕГЭ
по МАТЕМАТИКЕ

Базовый уровень

Дата: __ _____ 2026 года

Вариант _____

Выполнена: ФИО_____ класс _____

Инструкция по выполнению работы

Работа по математике состоит из двух частей, включающих в себя 19 заданий. Часть 1 содержит 12 заданий с кратким ответом базового и повышенного уровней сложности. Часть 2 содержит 7 заданий с развёрнутым ответом повышенного и высокого уровней сложности.

На выполнение работы отводится 3 часа 55 минут (235 минут).

Ответы к заданиям 1–12 записываются в виде целого числа или конечной десятичной дроби.

При выполнении заданий 13–19 требуется записать полное решение на отдельном листе бумаги.

При выполнении заданий можно пользоваться черновиком. **Записи в черновике не учитываются при оценивании работы.**

Баллы, полученные Вами за выполненные задания, суммируются. Постарайтесь выполнить как можно больше заданий и набрать наибольшее количество баллов.

После завершения работы проверьте, чтобы ответ на каждое задание был записан под правильным номером.

Желаем успеха!

© 2026 год. Вариант сгенерирован на сайте kim365.ru
Публикация в интернете или печатных изданиях без письменного согласия запрещена

Ответом к каждому заданию является конечная десятичная дробь, целое число или последовательность цифр. Запишите ответы к заданиям в поле ответа в тексте работы.

1 Шоколадка стоит 35 рублей. В воскресенье в супермаркете действует специальное предложение: заплатив за три шоколадки, покупатель получает четыре (одну в подарок). Сколько шоколадок можно получить на 310 рублей в воскресенье?

Ответ: _____

2 Установите соответствие между величинами и их возможными значениями: к каждому элементу первого столбца подберите соответствующий элемент из второго столбца.

ВЕЛИЧИНЫ	ЗНАЧЕНИЯ
А) масса двухлитрового пакета сока	1) 130 т
Б) масса взрослого кита	2) 2 кг
В) масса яблока	3) 400 мг
Г) масса таблетки лекарства	4) 120 г

В таблице под каждой буквой, соответствующей величине, укажите номер её возможного значения.

Ответ:

А	Б	В	Г

3 На рисунке жирными точками показана среднесуточная температура воздуха в Бресте каждый день с 6 по 18 июля 1981 года. По горизонтали указываются числа месяца, по вертикали — температура в градусах Цельсия. Для наглядности жирные точки соединены линиями.

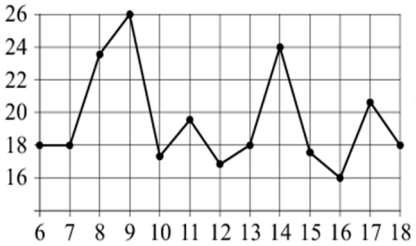

Определите по рисунку наименьшую среднесуточную температуру в период с 6 по 16 июля. Ответ дайте в градусах Цельсия.

Ответ: _____

4 Перевести температуру из шкалы Фаренгейта в шкалу Цельсия позволяет формула $t_{\text{C}} = \frac{5}{9}(t_{\text{F}} - 32)$, где t_{C} — температура в градусах по шкале Цельсия, t_{F} — температура в градусах по шкале Фаренгейта. Скольким градусам по шкале Цельсия соответствует 86 градусов по шкале Фаренгейта?

Ответ: _____

© 2026 год. Вариант сгенерирован на сайте kim365.ru
Публикация в интернете или печатных изданиях без письменного согласия запрещена

5 Фабрика выпускает сумки. В среднем из 125 сумок, поступивших в продажу, 5 сумок имеют скрытый дефект. Найдите вероятность того, что случайно выбранная сумка окажется без скрытого дефекта.

Ответ: _____

6 Для обслуживания международного семинара необходимо собрать группу переводчиков. Сведения о кандидатах представлены в таблице.

Номер переводчика	Языки	Стоимость услуг (руб. в день)
1	Английский	2000
2	Французский, испанский	5950
3	Французский	3050
4	Немецкий	4000
5	Испанский, немецкий	6800
6	Французский, английский	6100

Пользуясь таблицей, соберите хотя бы одну группу, в которой переводчики вместе владеют всеми четырьмя языками: английским, немецким, испанским и французским, а суммарная стоимость их услуг не превышает 12 000 рублей в день.
В ответе укажите какой-нибудь один набор номеров переводчиков без пробелов, запятых и других дополнительных символов.

Ответ: _____

© 2026 год. Вариант сгенерирован на сайте kim365.ru
Публикация в интернете или печатных изданиях без письменного согласия запрещена

7 На рисунках изображены графики функций вида $y = ax^2 + bx + c$. Установите соответствие между графиками функций и знаками коэффициентов a и c.

ФУНКЦИИ

А)

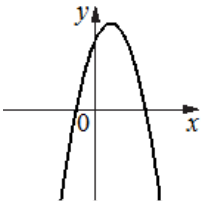

В)

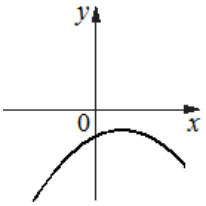

Б)

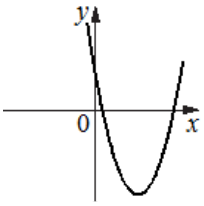

Г)

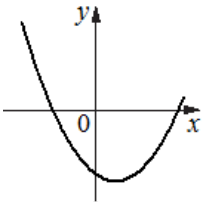

КОЭФФИЦИЕНТЫ

1) $a < 0$, $c < 0$

2) $a < 0$, $c > 0$

3) $a > 0$, $c > 0$

4) $a > 0$, $c < 0$

В таблице под каждой буквой укажите соответствующий номер.

Ответ:

А	Б	В	Г

8 Перед баскетбольным турниром измерили рост игроков баскетбольной команды города N. Оказалось, что рост каждого из баскетболистов этой команды больше 180 см и меньше 195 см. Выберите утверждения, которые верны при указанных условиях.

1) В баскетбольной команде города N обязательно есть игрок, рост которого равен 200 см.

2) В баскетбольной команде города N нет игроков с ростом 179 см.

3) Рост любого баскетболиста этой команды меньше 195 см.

4) Разница в росте любых двух игроков баскетбольной команды города N составляет более 15 см.

В ответе запишите номера выбранных утверждений без пробелов, запятых и других дополнительных символов.

Ответ: _____

© 2026 год. Вариант сгенерирован на сайте kim365.ru
Публикация в интернете или печатных изданиях без письменного согласия запрещена

9 План местности разбит на клетки. Каждая клетка обозначает квадрат $1\,\text{м} \times 1\,\text{м}$. Найдите площадь участка, выделенного на плане. Ответ дайте в квадратных метрах.

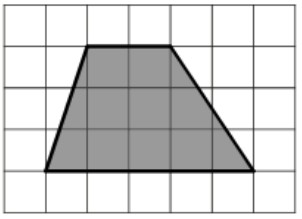

Ответ: _____

10 На рисунке показано, как выглядит колесо с 7 спицами. Сколько будет спиц в колесе, если угол между соседними спицами в нём будет равен 18°?

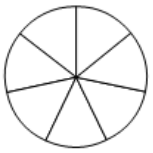

Ответ: _____

11 Плоскость, проходящая через точки льшим числом граней?

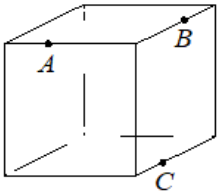

Ответ: _____

12 В треугольнике ABC угол B равен 120°. Медиана BM делит угол B пополам и равна 29. Найдите длину стороны AB.

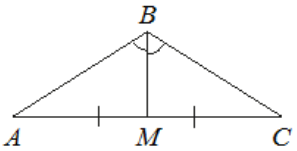

Ответ: _____

13 В прямоугольном параллелепипеде $ABCDA_1B_1C_1D_1$ рёбра CD, CB и диагональ CD_1 боковой грани равны соответственно 5, 5 и $\sqrt{29}$. Найдите объём параллелепипеда $ABCDA_1B_1C_1D_1$.

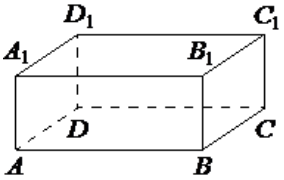

Ответ: _____

14 Найдите значение выражения $\frac{8}{3} \cdot \frac{4}{3} - \frac{5}{9}$.

Ответ: _____

© 2026 год. Вариант сгенерирован на сайте kim365.ru
Публикация в интернете или печатных изданиях без письменного согласия запрещена

15 Городской бюджет составляет 78 млн рублей, а расходы на одну из его статей составили 10%. Сколько миллионов рублей потрачено на эту статью бюджета?

Ответ: _____

16 Найдите значение выражения $\log_2 6{,}4 + \log_2 5$.

Ответ: _____

17 Найдите корень уравнения $(x-7)^2 - x^2 = 0$.

Ответ: _____

18 На координатной прямой отмечено число m.

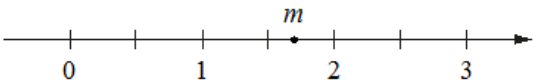

Каждому из четырёх чисел в левом столбце соответствует отрезок, которому оно принадлежит. Установите соответствие между числами и отрезками из правого столбца.

ЧИСЛА	ОТРЕЗКИ
А) $6-m$	1) $[-2;\ -1]$
Б) m^2	2) $[0;\ 1]$
В) $m-1$	3) $[2;\ 4]$
Г) $-\dfrac{2}{m}$	4) $[4;\ 5]$

Впишите в приведённую в ответе таблицу под каждой буквой соответствующий отрезку номер.

Ответ:

А	Б	В	Г

19 Найдите шестизначное натуральное число, которое записывается только цифрами 1 и 5 и делится на 55. В ответе запишите какое-нибудь одно такое число.

Ответ: _____

20 Расстояние между городами А и В равно 790 км. Из города А в город В выехал первый автомобиль, а через три часа после этого навстречу ему из города В выехал со скоростью 75 км/ч второй автомобиль. Найдите скорость первого автомобиля, если автомобили встретились на расстоянии 490 км от города А. Ответ дайте в км/ч.

Ответ: _____

© 2026 год. Вариант сгенерирован на сайте kim365.ru
Публикация в интернете или печатных изданиях без письменного согласия запрещена

21 Из книги выпало несколько идущих подряд листов. Номер последней страницы перед выпавшими листами — 276, номер первой страницы после выпавших листов записывается теми же цифрами, но в другом порядке. Сколько листов выпало?

Ответ: _____

© 2026 год. Вариант сгенерирован на сайте kim365.ru
Публикация в интернете или печатных изданиях без письменного согласия запрещена