Тренировочная работа в формате ЕГЭ
по МАТЕМАТИКЕ

Базовый уровень

Дата: __ _____ 2026 года

Вариант _____

Выполнена: ФИО_____ класс _____

Инструкция по выполнению работы

Работа по математике состоит из двух частей, включающих в себя 19 заданий. Часть 1 содержит 12 заданий с кратким ответом базового и повышенного уровней сложности. Часть 2 содержит 7 заданий с развёрнутым ответом повышенного и высокого уровней сложности.

На выполнение работы отводится 3 часа 55 минут (235 минут).

Ответы к заданиям 1–12 записываются в виде целого числа или конечной десятичной дроби.

При выполнении заданий 13–19 требуется записать полное решение на отдельном листе бумаги.

При выполнении заданий можно пользоваться черновиком. **Записи в черновике не учитываются при оценивании работы.**

Баллы, полученные Вами за выполненные задания, суммируются. Постарайтесь выполнить как можно больше заданий и набрать наибольшее количество баллов.

После завершения работы проверьте, чтобы ответ на каждое задание был записан под правильным номером.

Желаем успеха!

© 2026 год. Вариант сгенерирован на сайте kim365.ru
Публикация в интернете или печатных изданиях без письменного согласия запрещена

Ответом к каждому заданию является конечная десятичная дробь, целое число или последовательность цифр. Запишите ответы к заданиям в поле ответа в тексте работы.

1 В квартире установлен прибор учёта расхода горячей воды (счётчик). Показания счётчика 1 марта составляли 895 куб. м воды, а 1 апреля — 902 куб. м. Сколько нужно заплатить за горячую воду за март, если стоимость 1 куб. м горячей воды составляет 83 руб.? Ответ дайте в рублях.

Ответ: _____

2 Установите соответствие между величинами и их возможными значениями: к каждому элементу первого столбца подберите соответствующий элемент из второго столбца.

ВЕЛИЧИНЫ	ЗНАЧЕНИЯ
А) площадь почтовой марки	1) 162 кв. м
Б) площадь письменного стола	2) 1,2 кв. м
В) площадь города Санкт-Петербурга	3) 1439 кв. км
Г) площадь волейбольной площадки	4) 5,2 кв. см

В таблице под каждой буквой, соответствующей величине, укажите номер её возможного значения.

Ответ:

А	Б	В	Г

3 На рисунке жирными точками показана среднесуточная температура воздуха в Бресте каждый день с 6 по 18 июля 1981 года. По горизонтали указываются числа месяца, по вертикали — температура в градусах Цельсия. Для наглядности жирные точки соединены линиями.

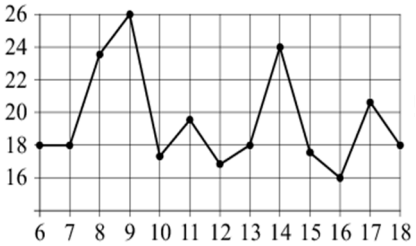

Определите по рисунку наименьшую среднесуточную температуру в период с 6 по 16 июля. Ответ дайте в градусах Цельсия.

Ответ: _____

4 Длина биссектрисы l_c, проведённой к стороне c треугольника со сторонами a, b и c, вычисляется по формуле $l_c = \frac{1}{a+b}\sqrt{ab\left((a+b)^2 - c^2\right)}$. Найдите биссектрису l_c, если $a = 3, b = 12$ и $c = 5\sqrt{5}$.

Ответ: _____

© 2026 год. Вариант сгенерирован на сайте kim365.ru
Публикация в интернете или печатных изданиях без письменного согласия запрещена

5 В фирме такси в наличии 25 легковых автомобилей: 10 из них чёрного цвета с жёлтыми надписями на боках, остальные — жёлтого цвета с чёрными надписями. Найдите вероятность того, что на случайный вызов приедет машина жёлтого цвета с чёрными надписями.

Ответ: _____

6 Расписание поездов Москва – Пермь и стоимость билетов представлены в таблице.

Номер поезда	Время отправления	Время прибытия (на следующие сутки)	Стоимость билета (руб.)
1	00:35	03:11	2068
2	03:35	03:21	1617
3	12:45	09:25	1960
4	13:05	13:46	2068
5	14:05	09:53	2877
6	16:50	13:21	2877
7	22:35	19:27	1960

Вадиму Алексеевичу нужно доехать до Перми из Москвы поездом. При этом ему необходимо приехать в Пермь не позже 12:00, в пути провести не более 22 часов и потратить на билет не больше 2000 рублей.
В ответе укажите какой-нибудь один номер подходящего поезда.

Ответ: _____

© 2026 год. Вариант сгенерирован на сайте kim365.ru
Публикация в интернете или печатных изданиях без письменного согласия запрещена

7 На рисунке точками показаны ежемесячные объёмы продаж обогревателей в магазине бытовой техники. По горизонтали указаны месяцы, по вертикали — количество проданных обогревателей. Для наглядности точки соединены линиями.

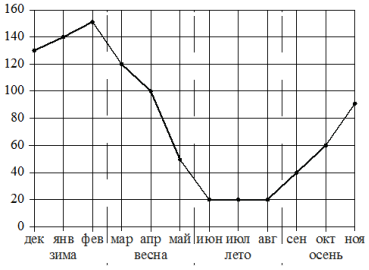

Пользуясь рисунком, поставьте в соответствие каждому из указанных периодов времени характеристику ежемесячного объёма продаж обогревателей.

ПЕРИОДЫ ВРЕМЕНИ	ХАРАКТЕРИСТИКИ
А) зима	1) ежемесячный объём продаж рос, но был меньше 100 штук
Б) весна	2) ежемесячный объём продаж падал
В) лето	3) ежемесячный объём продаж рос и был больше 120 штук
Г) осень	4) ежемесячный объём продаж не менялся в течение всего периода

В таблице под каждой буквой укажите соответствующий номер.

Ответ:

А	Б	В	Г

8 В группе учится 30 студентов, из них 20 человек сдали зачёт по экономике и 20 сдали зачёт по английскому языку. Выберите утверждения, которые верны при указанных условиях.

1) В этой группе найдётся 11 студентов, не сдавших ни одного из этих двух зачётов.
2) Хотя бы 10 студентов из этой группы сдали зачёты и по экономике, и по английскому языку.
3) Не более 20 студентов из этой группы сдали зачёты и по экономике, и по английскому языку.
4) В этой группе найдётся 20 студентов, которые не сдали зачёта по английскому языку, но сдали зачёт по экономике.

В ответе запишите номера выбранных утверждений без пробелов, запятых и других дополнительных символов.

Ответ: _____

9 План местности разбит на клетки. Каждая клетка обозначает квадрат 1 м × 1 м. Найдите площадь участка, изображённого на плане. Ответ дайте в квадратных метрах.

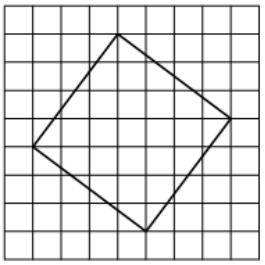

Ответ: _____

© 2026 год. Вариант сгенерирован на сайте kim365.ru
Публикация в интернете или печатных изданиях без письменного согласия запрещена

10 Вертикальный столб подпирает детскую горку посередине. Найдите высоту l этого столба, если высота h горки равна 3,2 м. Ответ дайте в метрах.

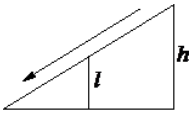

Ответ: _____

11 Вода в сосуде, имеющем форму правильной четырёхугольной призмы, находится на уровне h =180 см. На каком уровне окажется вода, если её перелить в другой сосуд, имеющий форму правильной четырёхугольной призмы, у которого сторона основания втрое больше, чем у данного? Ответ дайте в сантиметрах.

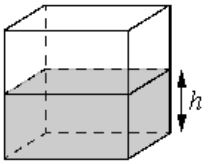

Ответ: _____

12 На окружности с центром O и диаметром AB отмечена точка C так, что угол COB равен 120°, $AC = 29$. Найдите длину диаметра окружности.

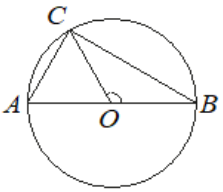

Ответ: _____

13 Радиус основания цилиндра равен 26, а его образующая равна 9. Сечение, параллельное оси цилиндра, удалено от неё на расстояние, равное 24. Найдите площадь этого сечения.

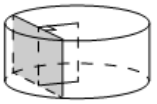

Ответ: _____

14 Найдите значение выражения $\left(\frac{17}{8} - \frac{1}{16}\right) : \frac{11}{48}$.

Ответ: _____

15 Городской бюджет составляет 14 млн рублей, а расходы на одну из его статей составили 45%. Сколько миллионов рублей потрачено на эту статью бюджета?

Ответ: _____

16 Найдите значение выражения $\frac{27^4}{3^6} : 9^2$.

Ответ: _____

© 2026 год. Вариант сгенерирован на сайте kim365.ru
Публикация в интернете или печатных изданиях без письменного согласия запрещена

17 Решите уравнение $x^2 = 25$. Если уравнение имеет более одного корня, в ответе укажите больший из них.

Ответ: _____

18 На координатной прямой отмечены точки A, B, C и D.

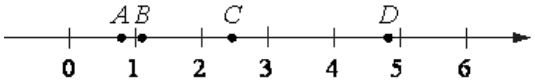

Каждой точке соответствует одно из чисел в правом столбце. Установите соответствие между указанными точками и числами.

ТОЧКИ	ЧИСЛА
A	*1)* $2\sqrt{2} - \sqrt{3}$
B	*2)* $\sqrt{2} \cdot \sqrt{3}$
C	*3)* $3\sqrt{2} - 2\sqrt{3}$
D	*4)* $\left(\sqrt{2}\right)^3 + 2$

В таблице для каждой точки укажите номер соответствующего числа.

Ответ:

A	*B*	*C*	*D*

19 Найдите пятизначное число, кратное 18, любые две соседние цифры которого отличаются на 3. В ответе укажите какое-нибудь одно такое число.

Ответ: _____

20 Поля и Оля, работая вместе, пропалывают грядку за 18 минут, а одна Оля — за 30 минут. За сколько минут пропалывает грядку одна Поля?

Ответ: _____

21 На кольцевой дороге расположено четыре бензоколонки: А, Б, В и Г. Расстояние между А и Б — 75 км, между А и В — 50 км, между В и Г — 40 км, между Г и А — 60 км (все расстояния измеряются вдоль кольцевой дороги по кратчайшей дуге).
Найдите расстояние (в километрах) между Б и В.

Ответ: _____

© 2026 год. Вариант сгенерирован на сайте kim365.ru
Публикация в интернете или печатных изданиях без письменного согласия запрещена