Тренировочная работа в формате ЕГЭ
по МАТЕМАТИКЕ

Базовый уровень

Дата: __ _____ 2026 года

Вариант _____

Выполнена: ФИО_____ класс _____

Инструкция по выполнению работы

Работа по математике состоит из двух частей, включающих в себя 19 заданий. Часть 1 содержит 12 заданий с кратким ответом базового и повышенного уровней сложности. Часть 2 содержит 7 заданий с развёрнутым ответом повышенного и высокого уровней сложности.

На выполнение работы отводится 3 часа 55 минут (235 минут).

Ответы к заданиям 1–12 записываются в виде целого числа или конечной десятичной дроби.

При выполнении заданий 13–19 требуется записать полное решение на отдельном листе бумаги.

При выполнении заданий можно пользоваться черновиком. **Записи в черновике не учитываются при оценивании работы.**

Баллы, полученные Вами за выполненные задания, суммируются. Постарайтесь выполнить как можно больше заданий и набрать наибольшее количество баллов.

После завершения работы проверьте, чтобы ответ на каждое задание был записан под правильным номером.

Желаем успеха!

© 2026 год. Вариант сгенерирован на сайте kim365.ru
Публикация в интернете или печатных изданиях без письменного согласия запрещена

Ответом к каждому заданию является конечная десятичная дробь, целое число или последовательность цифр. Запишите ответы к заданиям в поле ответа в тексте работы.

1 В летнем лагере 182 ребёнка и 25 воспитателей. В одном автобусе можно перевозить не больше 20 пассажиров. Какое наименьшее количество таких автобусов понадобится, чтобы за один раз перевезти всех из лагеря в город?

Ответ: _____

2 Установите соответствие между величинами и их возможными значениями: к каждому элементу первого столбца подберите соответствующий элемент из второго столбца.

ВЕЛИЧИНЫ	**ЗНАЧЕНИЯ**
А) площадь экрана монитора компьютера	**1)** 75 500 кв. км
Б) площадь города Санкт-Петербурга	**2)** 1439 кв. км
В) площадь ногтя на пальце взрослого человека	**3)** 100 кв. мм
Г) площадь Краснодарского края	**4)** 960 кв. см

В таблице под каждой буквой, соответствующей величине, укажите номер её возможного значения.

Ответ:

А	**Б**	**В**	**Г**

3 На рисунке жирными точками показано суточное количество осадков, выпадавших в Казани с 3 по 15 февраля 1909 года. По горизонтали указываются числа месяца, по вертикали — количество осадков, выпавших в соответствующий день, в миллиметрах. Для наглядности жирные точки на рисунке соединены линиями. Определите по рисунку, какое наибольшее количество осадков выпадало в период с 3 по 10 февраля. Ответ дайте в миллиметрах.

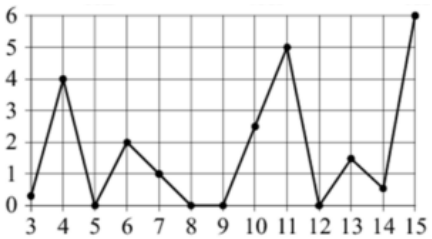

Ответ: _____

4 Теорему синусов можно записать в виде $\frac{a}{\sin\alpha} = \frac{b}{\sin\beta}$, где a и b — две стороны треугольника, а α и β — углы треугольника, лежащие против них соответственно. Пользуясь этой формулой, найдите a, если $b = 12$, $\sin\alpha = \frac{1}{6}$ и $\sin\beta = \frac{1}{5}$.

Ответ: _____

© 2026 год. Вариант сгенерирован на сайте kim365.ru
Публикация в интернете или печатных изданиях без письменного согласия запрещена

5 На борту самолёта 23 места рядом с запасными выходами и 22 места за перегородками, разделяющими салоны. Остальные места неудобны для пассажира высокого роста. Пассажир Л. высокого роста. Найдите вероятность того, что на регистрации при случайном выборе места пассажиру Л. достанется удобное место, если всего в самолёте 300 мест.

Ответ: _____

6 Михаил решил посетить Парк аттракционов. Сведения о билетах на аттракционы представлены в таблице. Некоторые билеты позволяют посетить сразу два аттракциона.

Номер билета	Аттракционы	Стоимость (руб.)
1	Комната страха, комната смеха	350
2	Автодром	200
3	Колесо обозрения	300
4	Комната смеха	250
5	Колесо обозрения, автодром	450
6	Автодром, комната смеха	400

Пользуясь таблицей, подберите билеты так, чтобы Михаил посетил все четыре аттракциона: колесо обозрения, комнату страха, комнату смеха, автодром, а суммарная стоимость билетов не превышала 900 рублей.
В ответе укажите какой-нибудь один набор номеров билетов без пробелов, запятых и других дополнительных символов.

Ответ: _____

© 2026 год. Вариант сгенерирован на сайте kim365.ru
Публикация в интернете или печатных изданиях без письменного согласия запрещена

7 На рисунках изображены графики функций вида $y = kx + b$. Установите соответствие между графиками функций и угловыми коэффициентами прямых.

ГРАФИКИ

А)

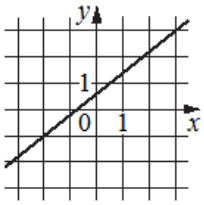

В)

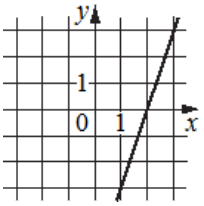

Б)

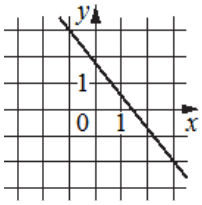

Г)

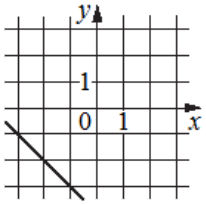

УГЛОВЫЕ КОЭФФИЦИЕНТЫ

1) -1

2) $-1{,}25$

3) 3

4) 0,8

В таблице под каждой буквой укажите соответствующий номер.

Ответ:

А	Б	В	Г

8 Игорь Витальевич часто ездит на работу на велосипеде. Он не ездит на велосипеде в те дни, когда идёт дождь или снег, а также по четвергам, когда надевает парадный костюм. Выберите все утверждения, которые верны при приведённых условиях.

1) Сегодня Игорь Витальевич приехал на работу на велосипеде, значит, сегодня нет дождя.
2) Каждый раз, когда в течение дня будет ясно, Игорь Витальевич едет на работу на велосипеде.
3) Каждый раз, когда Игорь Витальевич добирается до работы без велосипеда, он одет в парадный костюм.
4) Каждый раз, когда на улице идёт снег, Игорь Витальевич добирается до работы без велосипеда.

В ответе запишите номера выбранных утверждений без пробелов, запятых и других дополнительных символов.

Ответ: _____

9 План местности разбит на клетки. Каждая клетка обозначает квадрат 1 м × 1 м. Найдите площадь участка, изображённого на плане. Ответ дайте в квадратных метрах.

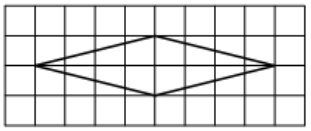

Ответ: _____

© 2026 год. Вариант сгенерирован на сайте kim365.ru
Публикация в интернете или печатных изданиях без письменного согласия запрещена

10 Перила лестницы дачного дома для надёжности укреплены посередине вертикальным столбом. Найдите высоту l этого столба, если наименьшая высота h_1 перил равна 1,25 м, а наибольшая высота h_2 равна 2,25 м. Ответ дайте в метрах.

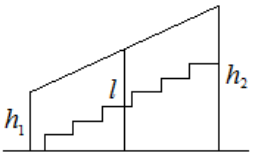

Ответ: _____

11 Пирамида Хеопса имеет форму правильной четырёхугольной пирамиды, сторона основания которой равна 230 м, а высота — 147 м. Сторона основания точной музейной копии этой пирамиды равна 23 см. Найдите высоту музейной копии. Ответ дайте в сантиметрах.

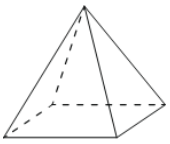

Ответ: _____

12 В треугольнике ABC известно, что $AB = BC = 13$, $AC = 10$. Найдите площадь треугольника ABC.

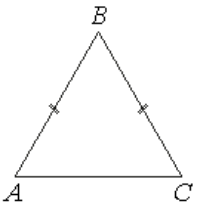

Ответ: _____

13 Даны два цилиндра. Радиус основания и высота первого цилиндра равны соответственно 3 и 2, а второго — 8 и 9. Во сколько раз объём второго цилиндра больше объёма первого цилиндра?

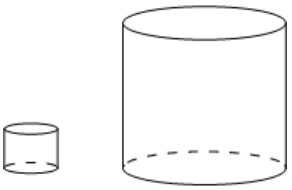

Ответ: _____

14 Найдите значение выражения $\frac{32}{5} : \frac{26}{25} \cdot \frac{13}{8}$.

Ответ: _____

15 В школе мальчики составляют 53% числа всех учащихся. Сколько в этой школе всего учащихся, если девочек в ней на 24 человека меньше, чем мальчиков?

Ответ: _____

16 Найдите значение выражения $\frac{\sqrt{384}}{\sqrt{6}}$.

Ответ: _____

© 2026 год. Вариант сгенерирован на сайте kim365.ru
Публикация в интернете или печатных изданиях без письменного согласия запрещена

17 Найдите корень уравнения $13^{2x+3} : 13^{-4x-11} = 169$.

Ответ: _____

18 Число m равно $\sqrt{0{,}15}$.

Каждому из четырёх чисел в левом столбце соответствует отрезок, которому оно принадлежит. Установите соответствие между числами и отрезками из правого столбца.

ЧИСЛА	**ОТРЕЗКИ**
А) $-\dfrac{1}{m}$	**1)** $[-3;\ -2]$
Б) m^2	**2)** $[-1;\ 0]$
В) $4m$	**3)** $[0;\ 1]$
Г) $m-1$	**4)** $[1;\ 2]$

Впишите в приведённую в ответе таблицу под каждой буквой соответствующий отрезку номер.

Ответ:

А	**Б**	**В**	**Г**

19 Найдите трёхзначное число, кратное 40, все цифры которого различны, а сумма квадратов цифр делится на 4, но не делится на 16. В ответе укажите какое-нибудь одно такое число.

Ответ: _____

20 Имеется два сплава. Первый сплав содержит 40 % меди, второй — 15 % меди. Из этих двух сплавов получили третий сплав, содержащий 35 % меди. Масса первого сплава равна 20 кг. Найдите массу третьего сплава. Ответ дайте в килограммах.

Ответ: _____

21 Про натуральные числа A, B и C известно, что каждое из них больше 5, но меньше 9. Загадали натуральное число, затем его умножили на A, потом прибавили к полученному произведению B и вычли C. Получилось 249. Какое число было загадано?

Ответ: _____

© 2026 год. Вариант сгенерирован на сайте kim365.ru
Публикация в интернете или печатных изданиях без письменного согласия запрещена