Тренировочная работа в формате ЕГЭ
по МАТЕМАТИКЕ

Базовый уровень

Дата: __ _____ 2026 года

Вариант _____

Выполнена: ФИО_____ класс _____

Инструкция по выполнению работы

Работа по математике состоит из двух частей, включающих в себя 19 заданий. Часть 1 содержит 12 заданий с кратким ответом базового и повышенного уровней сложности. Часть 2 содержит 7 заданий с развёрнутым ответом повышенного и высокого уровней сложности.

На выполнение экзаменационной работы по математике отводится 3 часа 55 минут (235 минут).

Ответы к заданиям 1–12 записываются в виде целого числа или конечной десятичной дроби.

При выполнении заданий 13–19 требуется записать полное решение на отдельном листе бумаги.

При выполнении заданий можно пользоваться черновиком. **Записи в черновике, а также в тексте контрольных измерительных материалов не учитываются при оценивании работы.**

Баллы, полученные Вами за выполненные задания, суммируются. Постарайтесь выполнить как можно больше заданий и набрать наибольшее количество баллов.

После завершения работы проверьте, чтобы ответ на каждое задание был записан под правильным номером.

Желаем успеха!

© 2026 год. Вариант сгенерирован на сайте kim365.ru
Публикация в интернете или печатных изданиях без письменного согласия запрещена

Ответом к каждому заданию является конечная десятичная дробь, целое число или последовательность цифр. Запишите ответы к заданиям в поле ответа в тексте работы.

1 Шоколадка стоит 20 рублей. В воскресенье в супермаркете действует специальное предложение: заплатив за две шоколадки, покупатель получает три (одну в подарок). Какое наибольшее число шоколадок можно получить на 150 рублей в воскресенье?

Ответ: _____

2 Установите соответствие между величинами и их возможными значениями: к каждому элементу первого столбца подберите соответствующий элемент из второго столбца.

ВЕЛИЧИНЫ	**ЗНАЧЕНИЯ**
А) золотой норматив ГТО по бегу на 100 м для девочек 16–17 лет	**1)** 16,3 секунды
Б) длительность лекции в вузе	**2)** 365 суток
В) время в пути поезда Петрозаводск – Москва	**3)** 15 часов
Г) время одного оборота Земли вокруг Солнца	**4)** 1,5 часа

В таблице под каждой буквой, соответствующей величине, укажите номер её возможного значения.

Ответ:

А	**Б**	**В**	**Г**

3 На диаграмме показано количество посетителей сайта РИА «Новости» во все дни с 10 по 29 ноября 2009 года. По горизонтали указываются дни месяца, по вертикали — количество посетителей сайта за данный день. Определите по диаграмме, какого числа количество посетителей сайта РИА «Новости» было наибольшим за указанный период.

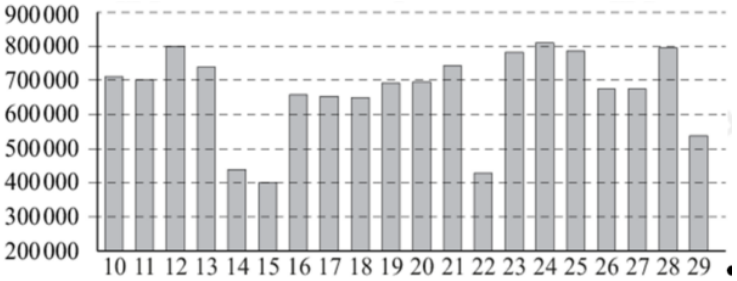

Ответ: _____

© 2026 год. Вариант сгенерирован на сайте kim365.ru
Публикация в интернете или печатных изданиях без письменного согласия запрещена

4 В фирме «Эх, прокачу!» стоимость поездки на такси длительностью меньше 5 минут составляет 150 рублей. Если поездка длится 5 минут или более, то её стоимость (в рублях) рассчитывается по формуле $C = 150 + 11\,(t - 5)$, где t — длительность поездки, выраженная в минутах $(t \geq 5)$. Пользуясь этой формулой, рассчитайте стоимость 25-минутной поездки. Ответ укажите в рублях.

Ответ: _____

5 Вероятность того, что новая шариковая ручка пишет плохо или вовсе не пишет, равна 0,21. Покупатель, не глядя, берёт одну шариковую ручку из коробки. Найдите вероятность того, что эта ручка пишет хорошо.

Ответ: _____

6 Михаил решил посетить Парк аттракционов. Сведения о билетах на аттракционы представлены в таблице. Некоторые билеты позволяют посетить сразу два аттракциона.

Номер билета	Аттракционы	Стоимость (руб.)
1	Комната смеха	300
2	Комната страха, комната смеха	400
3	Автодром, комната смеха	350
4	Колесо обозрения	200
5	Колесо обозрения, автодром	300
6	Автодром	100

Пользуясь таблицей, подберите билеты так, чтобы Михаил посетил все четыре аттракциона: колесо обозрения, комнату страха, комнату смеха, автодром, а суммарная стоимость билетов не превышала 750 рублей.
В ответе укажите какой-нибудь один набор номеров билетов без пробелов, запятых и других дополнительных символов.

Ответ: _____

© 2026 год. Вариант сгенерирован на сайте kim365.ru
Публикация в интернете или печатных изданиях без письменного согласия запрещена

7 На рисунке точками изображено число родившихся мальчиков и девочек (по отдельности) за каждый календарный месяц 2013 года в городском роддоме. По горизонтали указываются месяцы, по вертикали — число рождений. Для наглядности точки соединены линиями.

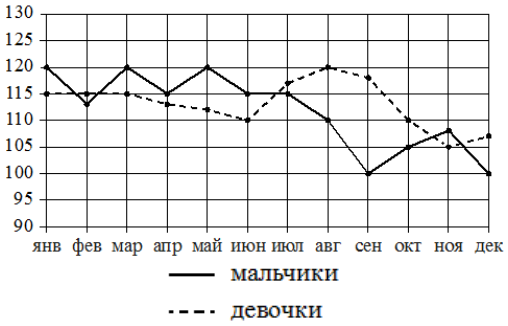

Пользуясь рисунком, поставьте в соответствие каждому из указанных периодов времени характеристику рождаемости в этот период.

ПЕРИОДЫ ВРЕМЕНИ

А) январь – март

Б) апрель – июнь

В) июль – сентябрь

Г) октябрь – декабрь

ХАРАКТЕРИСТИКИ

1) в каждый месяц этого периода число рождений девочек и мальчиков различалось не более чем на 5

2) в один из месяцев этого периода число рождений мальчиков и девочек различалось более чем на 10

3) в каждом месяце этого периода мальчиков рождалось больше, чем девочек

4) рождаемость девочек достигла минимума за весь год

В таблице под каждой буквой укажите соответствующий номер.

Ответ:

А	Б	В	Г

8 Двадцать выпускников одного из одиннадцатых классов сдавали ЕГЭ по обществознанию. Самый низкий балл, полученный в этом классе, был равен 36, а самый высокий — 75. Выберите утверждения, которые верны при указанных условиях.

1) Среди этих выпускников есть человек, который получил 75 баллов за ЕГЭ по обществознанию.

2) Среди этих выпускников есть двадцать человек с равными баллами за ЕГЭ по обществознанию.

3) Среди этих выпускников есть человек, получивший 20 баллов за ЕГЭ по обществознанию.

4) Баллы за ЕГЭ по обществознанию любого из этих двадцати человек не ниже 35.

В ответе запишите номера выбранных утверждений без пробелов, запятых и других дополнительных символов.

Ответ: _____

© 2026 год. Вариант сгенерирован на сайте kim365.ru
Публикация в интернете или печатных изданиях без письменного согласия запрещена

9 План местности разбит на клетки. Каждая клетка обозначает квадрат 1 м × 1 м. Найдите площадь участка, изображённого на плане. Ответ дайте в квадратных метрах.

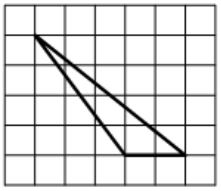

Ответ: _____

10 Пожарную лестницу длиной 13 м приставили к окну дома. Нижний конец лестницы отстоит от стены на 5 м. На какой высоте находится верхний конец лестницы? Ответ дайте в метрах.

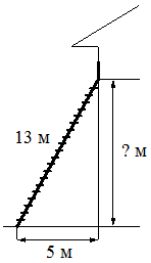

Ответ: _____

11 В бак цилиндрической формы, площадь основания которого равна 80 квадратным сантиметрам, налита жидкость. Чтобы измерить объём детали сложной формы, её полностью погружают в эту жидкость. Найдите объём детали, если после её погружения уровень жидкости в баке поднялся на 10 см. Ответ дайте в кубических сантиметрах.

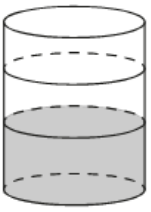

Ответ: _____

12 В треугольнике ABC известно, что $AB = BC$, медиана BM равна 2. Площадь треугольника ABC равна $2\sqrt{21}$. Найдите длину стороны AB.

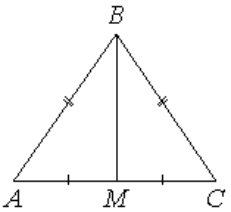

Ответ: _____

13 В прямоугольном параллелепипеде $ABCDA_1B_1C_1D_1$ рёбра DA, DC и диагональ DA_1 боковой грани равны соответственно 2, 6 и $2\sqrt{10}$. Найдите объём параллелепипеда $ABCDA_1B_1C_1D_1$.

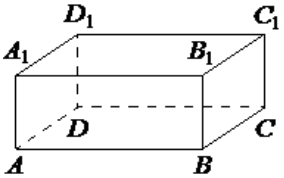

Ответ: _____

14 Найдите значение выражения $\frac{9}{2} : 0{,}9 - 4\frac{1}{5}$.

Ответ: _____

© 2026 год. Вариант сгенерирован на сайте kim365.ru
Публикация в интернете или печатных изданиях без письменного согласия запрещена

15 Тетрадь стоит 20 рублей. Сколько рублей заплатит покупатель за 140 тетрадей, если при покупке более 100 тетрадей магазин делает скидку 20% от стоимости всей покупки?

Ответ: _____

16 Найдите значение выражения $\frac{2{,}4\cdot 10^2}{6\cdot 10^{-1}}$.

Ответ: _____

17 Найдите корень уравнения $\log_5(-4x+5)=-1$.

Ответ: _____

18 На координатной прямой отмечены точки A, B, C и D.

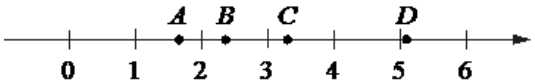

Каждой точке соответствует одно из чисел в правом столбце. Установите соответствие между указанными точками и числами.

ТОЧКИ	**ЧИСЛА**
A	*1)* $\log_2 10$
B	*2)* $\frac{7}{3}$
C	*3)* $\sqrt{26}$
D	*4)* $\left(\frac{3}{5}\right)^{-1}$

В таблице для каждой точки укажите номер соответствующего числа.

Ответ:

A	*B*	*C*	*D*

19 Найдите трёхзначное натуральное число, которое при делении и на 4, и на 15 даёт равные ненулевые остатки и последняя цифра в записи которого является средним арифметическим двух других цифр. В ответе укажите какое-нибудь одно такое число.

Ответ: _____

20 Первую треть пути автомобиль ехал со скоростью 30 км/ч, вторую треть — со скоростью 120 км/ч, а последнюю — со скоростью 40 км/ч. Найдите среднюю скорость автомобиля на протяжении всего пути. Ответ дайте в км/ч.

Ответ: _____

© 2026 год. Вариант сгенерирован на сайте kim365.ru
Публикация в интернете или печатных изданиях без письменного согласия запрещена

21 Петя меняет маленькие фишки на большие. За один обмен он получает 4 больших фишки, отдав 11 маленьких. До обменов у Пети было 150 фишек (среди них были и большие, и маленькие), а после стало 73. Сколько обменов он совершил?

Ответ: _____

© 2026 год. Вариант сгенерирован на сайте kim365.ru
Публикация в интернете или печатных изданиях без письменного согласия запрещена