Тренировочная работа в формате ЕГЭ
по МАТЕМАТИКЕ

Базовый уровень

Дата: __ _____ 2026 года

Вариант _____

Выполнена: ФИО_____ класс _____

Инструкция по выполнению работы

Работа по математике состоит из двух частей, включающих в себя 19 заданий. Часть 1 содержит 12 заданий с кратким ответом базового и повышенного уровней сложности. Часть 2 содержит 7 заданий с развёрнутым ответом повышенного и высокого уровней сложности.

На выполнение работы отводится 3 часа 55 минут (235 минут).

Ответы к заданиям 1–12 записываются в виде целого числа или конечной десятичной дроби.

При выполнении заданий 13–19 требуется записать полное решение на отдельном листе бумаги.

При выполнении заданий можно пользоваться черновиком. **Записи в черновике не учитываются при оценивании работы.**

Баллы, полученные Вами за выполненные задания, суммируются. Постарайтесь выполнить как можно больше заданий и набрать наибольшее количество баллов.

После завершения работы проверьте, чтобы ответ на каждое задание был записан под правильным номером.

Желаем успеха!

© 2026 год. Вариант сгенерирован на сайте kim365.ru
Публикация в интернете или печатных изданиях без письменного согласия запрещена

Ответом к каждому заданию является конечная десятичная дробь, целое число или последовательность цифр. Запишите ответы к заданиям в поле ответа в тексте работы.

1 Шоколадка стоит 20 рублей. В воскресенье в супермаркете действует специальное предложение: заплатив за две шоколадки, покупатель получает три (одну в подарок). Какое наибольшее число шоколадок можно получить на 150 рублей в воскресенье?

Ответ: _____

2 Установите соответствие между величинами и их возможными значениями: к каждому элементу первого столбца подберите соответствующий элемент из второго столбца.

ВЕЛИЧИНЫ	ЗНАЧЕНИЯ
А) золотой норматив ГТО по бегу на 100 м для девочек 16–17 лет	1) 16,3 секунды
Б) длительность лекции в вузе	2) 365 суток
В) время в пути поезда Петрозаводск – Москва	3) 15 часов
Г) время одного оборота Земли вокруг Солнца	4) 1,5 часа

В таблице под каждой буквой, соответствующей величине, укажите номер её возможного значения.

Ответ:

А	Б	В	Г

3 На диаграмме показана среднемесячная температура воздуха в Симферополе за каждый месяц 1988 года. По горизонтали указываются месяцы, по вертикали – температура в градусах Цельсия.

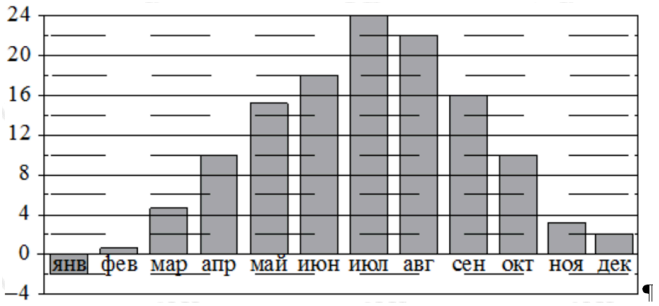

Определите по диаграмме разность между наибольшей и наименьшей среднемесячными температурами в Симферополе в 1988 году.

Ответ: _____

© 2026 год. Вариант сгенерирован на сайте kim365.ru
Публикация в интернете или печатных изданиях без письменного согласия запрещена

4 Работа постоянного тока (в джоулях) вычисляется по формуле $A = I^2Rt$, где I — сила тока (в амперах), R — сопротивление (в омах), t — время (в секундах). Пользуясь этой формулой, найдите A (в джоулях), если $t = 2$ с, $I = 6$ А и $R = 5$ Ом.

Ответ: _____

5 На борту самолёта 16 мест рядом с запасными выходами и 20 мест за перегородками, разделяющими салоны. Остальные места неудобны для пассажира высокого роста. Пассажир Л. высокого роста. Найдите вероятность того, что на регистрации при случайном выборе места пассажиру Л. достанется удобное место, если всего в самолёте 225 мест.

Ответ: _____

6 Дмитрий Валентинович собирается в туристическую поездку на трое суток в некоторый город. В таблице дана информация о гостиницах в этом городе со свободными номерами на время его поездки.

Название гостиницы	Рейтинг гостиницы	Расстояние до центральной площади (км)	Цена номера (руб. за сутки)
«Южная»	7,5	2,2	3550
«Уют-плюс»	8,7	3,4	3100
«Центральная»	9,1	2,4	3450
«Вокзальная»	8,6	1,9	3300
«Турист»	6,9	2,3	3050
«Эльдорадо»	8,5	2,8	3150

Дмитрий Валентинович хочет остановиться в гостинице, которая находится не далее 2,5 км от центральной площади и рейтинг которой не ниже 8,5. Среди гостиниц, удовлетворяющих этим условиям, выберите гостиницу с наименьшей ценой номера за сутки. Сколько рублей стоит проживание в этой гостинице в течение трёх суток?

Ответ: _____

© 2026 год. Вариант сгенерирован на сайте kim365.ru
Публикация в интернете или печатных изданиях без письменного согласия запрещена

7 На рисунке изображён график функции $y = f(x)$. Числа a, b, c, d и e задают на оси Ox интервалы. Пользуясь графиком, поставьте в соответствие каждому интервалу характеристику функции.

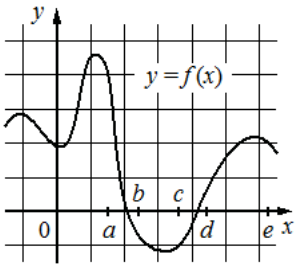

ИНТЕРВАЛЫ	ХАРАКТЕРИСТИКИ
А) $(a;\ b)$	1) функция возрастает на интервале
Б) $(b;\ c)$	2) функция убывает на интервале
В) $(c;\ d)$	3) значение функции положительно в каждой точке интервала
Г) $(d;\ e)$	4) значение функции отрицательно в каждой точке интервала

В таблице под каждой буквой укажите соответствующий номер.

Ответ:

А	Б	В	Г

8 Повар испёк для вечеринки 45 кексов, из них 15 кексов он посыпал кокосовой стружкой, а 20 кексов посыпал сахарной пудрой. Выберите все утверждения, которые верны при указанных условиях.

1) Хотя бы 16 кексов посыпаны и сахарной пудрой, и кокосовой стружкой.
2) Найдётся 10 кексов, которые ничем не посыпаны.
3) Не может оказаться больше 15 кексов, посыпанных и сахарной пудрой, и кокосовой стружкой.
4) Если кекс посыпан сахарной пудрой, то он посыпан кокосовой стружкой.

В ответе запишите номера выбранных утверждений без пробелов, запятых и других дополнительных символов.

Ответ: _____

9 План местности разбит на клетки. Каждая клетка обозначает квадрат 1 м × 1 м. Найдите площадь участка, изображённого на плане. Ответ дайте в квадратных метрах.

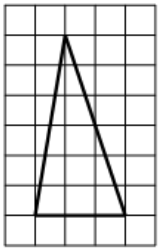

Ответ: _____

© 2026 год. Вариант сгенерирован на сайте kim365.ru
Публикация в интернете или печатных изданиях без письменного согласия запрещена

10 Диагональ прямоугольного экрана телевизора равна 100 см, а высота экрана 60 см. Найдите ширину экрана. Ответ дайте в сантиметрах.

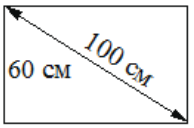

Ответ: _____

11 Двускатную крышу дома, имеющего в основании прямоугольник (см. рис.), необходимо полностью покрыть рубероидом. Высота крыши равна 3 м, длины стен дома равны 7 м и 8 м. Найдите, сколько рубероида (в квадратных метрах) нужно для покрытия этой крыши, если скаты крыши равны.

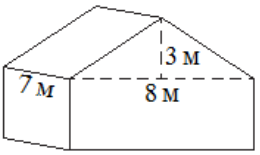

Ответ: _____

12 В окружности с центром O отрезки AC и BD — диаметры. Центральный угол AOD равен 112°. Найдите угол ACB. Ответ дайте в градусах.

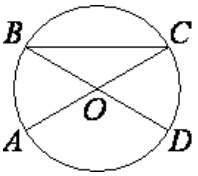

Ответ: _____

13 Даны два конуса. Радиус основания и высота первого конуса равны соответственно 2 и 3, а второго — 8 и 6. Во сколько раз объём второго конуса больше объёма первого?

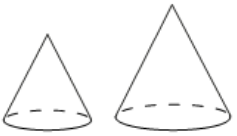

Ответ: _____

14 Найдите значение выражения $(7{,}6 - 3{,}1) \cdot 6{,}8$.

Ответ: _____

15 Площадь земель фермерского хозяйства, отведённых под посадку сельскохозяйственных культур, составляет 49 гектаров и распределена между зерновыми культурами и картофелем в отношении $2 : 5$ соответственно. Сколько гектаров занимает картофель?

Ответ: _____

16 Найдите значение выражения $(0{,}01)^2 \cdot 10^4 : 3^{-2}$.

Ответ: _____

© 2026 год. Вариант сгенерирован на сайте kim365.ru
Публикация в интернете или печатных изданиях без письменного согласия запрещена

17 Найдите корень уравнения $(x-7)^2 - x^2 = 0$.

Ответ: _____

18 На координатной прямой отмечено число m.

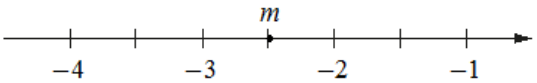

Каждому из четырёх чисел в левом столбце соответствует отрезок, которому оно принадлежит. Установите соответствие между числами и отрезками из правого столбца.

ЧИСЛА	ОТРЕЗКИ
А) $\dfrac{m}{10}$	1) $[-2;\ -1]$
Б) $m^2 - 3$	2) $[-1;\ 0]$
В) $-\sqrt{-m}$	3) $[0;\ 1]$
Г) $-\dfrac{1}{m}$	4) $[3;\ 4]$

Впишите в приведённую в ответе таблицу под каждой буквой соответствующий отрезку номер.

Ответ:

А	Б	В	Г

19 На шести карточках написаны цифры 1; 2; 3; 3; 4; 7 (по одной цифре на каждой карточке). В выражении

□+□□+□□□

вместо каждого квадратика положили карточку из данного набора. Оказалось, что полученная сумма делится на 20. В ответе укажите какую-нибудь одну такую сумму.

Ответ: _____

20 Расстояние между городами А и В равно 670 км. Из города А в город В выехал первый автомобиль, а через два часа после этого навстречу ему из города В выехал со скоростью 90 км/ч второй автомобиль. Найдите скорость первого автомобиля, если автомобили встретились на расстоянии 400 км от города А. Ответ дайте в км/ч.

Ответ: _____

21 На ленте по разные стороны от середины отмечены две тонкие поперечные полоски: синяя и красная. Если разрезать ленту по красной полоске, то одна часть будет на 35 см длиннее другой. Если разрезать ленту по синей полоске, то одна часть будет на 5 см длиннее другой. Найдите расстояние (в сантиметрах) между красной и синей полосками.

Ответ: _____

© 2026 год. Вариант сгенерирован на сайте kim365.ru
Публикация в интернете или печатных изданиях без письменного согласия запрещена