Тренировочная работа в формате ЕГЭ
по МАТЕМАТИКЕ

Базовый уровень

Дата: __ _____ 2026 года

Вариант _____

Выполнена: ФИО_____ класс _____

Инструкция по выполнению работы

Работа по математике состоит из двух частей, включающих в себя 19 заданий. Часть 1 содержит 12 заданий с кратким ответом базового и повышенного уровней сложности. Часть 2 содержит 7 заданий с развёрнутым ответом повышенного и высокого уровней сложности.

На выполнение работы отводится 3 часа 55 минут (235 минут).

Ответы к заданиям 1–12 записываются в виде целого числа или конечной десятичной дроби.

При выполнении заданий 13–19 требуется записать полное решение на отдельном листе бумаги.

При выполнении заданий можно пользоваться черновиком. **Записи в черновике не учитываются при оценивании работы.**

Баллы, полученные Вами за выполненные задания, суммируются. Постарайтесь выполнить как можно больше заданий и набрать наибольшее количество баллов.

После завершения работы проверьте, чтобы ответ на каждое задание был записан под правильным номером.

Желаем успеха!

© 2026 год. Вариант сгенерирован на сайте kim365.ru
Публикация в интернете или печатных изданиях без письменного согласия запрещена

Ответом к каждому заданию является конечная десятичная дробь, целое число или последовательность цифр. Запишите ответы к заданиям в поле ответа в тексте работы.

1 За 12 минут велосипедист проехал 4 километра. Сколько километров он проедет за 33 минуты, если будет ехать с той же скоростью?

Ответ: _____

2 Установите соответствие между величинами и их возможными значениями: к каждому элементу первого столбца подберите соответствующий элемент из второго столбца.

ВЕЛИЧИНЫ	ЗНАЧЕНИЯ
А) площадь футбольного поля	1) 97,5 кв. см
Б) площадь почтовой марки	2) 2511 кв. км
В) площадь купюры достоинством 100 рублей	3) 165 кв. мм
Г) площадь города Москвы	4) 7000 кв. м

В таблице под каждой буквой, соответствующей величине, укажите номер её возможного значения.

Ответ:

А	Б	В	Г

3 На рисунке жирными точками показано суточное количество осадков, выпадавших в Томске с 8 по 24 января 2005 года. По горизонтали указываются числа месяца, по вертикали — количество осадков, выпавших в соответствующий день, в миллиметрах. Для наглядности жирные точки на рисунке соединены линией.

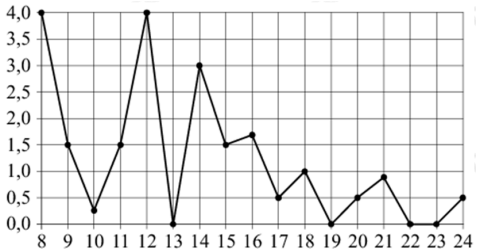

Определите по рисунку наибольшее суточное количество осадков за данный период. Ответ дайте в миллиметрах.

Ответ: _____

4 Теорему синусов можно записать в виде $\frac{a}{\sin\alpha} = \frac{b}{\sin\beta}$, где a и b — две стороны треугольника, а α и β — углы треугольника, лежащие против них соответственно. Пользуясь этой формулой, найдите a, если $b = 9$, $\sin\alpha = \frac{1}{6}$ и $\sin\beta = \frac{1}{2}$.

Ответ: _____

© 2026 год. Вариант сгенерирован на сайте kim365.ru
Публикация в интернете или печатных изданиях без письменного согласия запрещена

5 На семинар приехали 6 учёных из Норвегии, 5 из России и 9 из Испании. Каждый учёный подготовил один доклад. Порядок докладов определяется случайным образом. Найдите вероятность того, что восьмым окажется доклад учёного из России.

Ответ: _____

6 На соревнованиях по прыжкам в воду судьи выставили оценки от 0 до 10 трём спортсменам. Результаты приведены в таблице.

Номер спортсмена	К*	I судья	II судья	III судья	IV судья	V судья	VI судья	VII судья
1	7	8,5	7,0	7,7	5,4	7,7	8,1	5,8
2	9,5	6,3	5,4	6,6	8,5	6,3	7,7	6,5
3	8	8,3	7,8	7,1	7,7	6,8	7,5	5,4

* К — коэффициент сложности.

Итоговый балл вычисляется следующим образом: две наибольшие и две наименьшие оценки отбрасываются, а три оставшиеся складываются, и их сумма умножается на коэффициент сложности.

В ответе укажите номера спортсменов, итоговый балл которых больше 170, без пробелов, запятых и других дополнительных символов.

Ответ: _____

7 На рисунке изображён график функции $y = f(x)$ и отмечены точки A, B, C и D на оси Ox. Пользуясь графиком, поставьте в соответствие каждой точке характеристики функции и её производной.

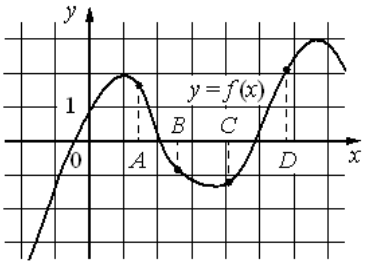

ТОЧКИ	ХАРАКТЕРИСТИКИ ФУНКЦИИ И ПРОИЗВОДНОЙ
A	1) значение функции в точке отрицательно, и значение производной функции в точке отрицательно
B	2) значение функции в точке положительно, и значение производной функции в точке положительно
C	3) значение функции в точке отрицательно, а значение производной функции в точке положительно
D	4) значение функции в точке положительно, а значение производной функции в точке отрицательно

В таблице под каждой буквой укажите соответствующий номер.

Ответ:

A	*B*	*C*	*D*

© 2026 год. Вариант сгенерирован на сайте kim365.ru
Публикация в интернете или печатных изданиях без письменного согласия запрещена

8 Хозяйка к празднику купила торт, ананас, сок и мясную нарезку. Торт стоил дороже ананаса, но дешевле мясной нарезки, сок стоил дешевле торта. Выберите все утверждения, которые верны при указанных условиях.

1) Ананас стоил дешевле мясной нарезки.
2) За сок заплатили больше, чем за мясную нарезку.
3) Мясная нарезка — самая дорогая из покупок.
4) Торт — самая дешёвая из покупок.

В ответе запишите номера выбранных утверждений без пробелов, запятых и других дополнительных символов.

Ответ: _____

9 План местности разбит на клетки. Каждая клетка обозначает квадрат 1 м × 1 м. Найдите площадь участка, изображённого на плане. Ответ дайте в квадратных метрах.



Ответ: _____

10 Перила лестницы дачного дома для надёжности укреплены посередине вертикальным столбом. Найдите высоту l этого столба, если наименьшая высота h_1 перил равна 1,1 м, а наибольшая высота h_2 равна 1,9 м. Ответ дайте в метрах.

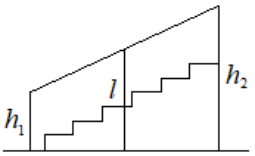

Ответ: _____

11 Даны две кружки цилиндрической формы. Первая кружка в четыре с половиной раза выше второй, а вторая в полтора раза шире первой. Во сколько раз объём второй кружки меньше объёма первой?



Ответ: _____

12 В равнобедренном треугольнике ABC медиана BM, проведённая к основанию, равна 7, а $\operatorname{tg} A = \dfrac{7}{24}$. Найдите длину боковой стороны треугольника ABC.

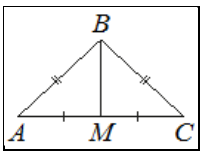

Ответ: _____

© 2026 год. Вариант сгенерирован на сайте kim365.ru
Публикация в интернете или печатных изданиях без письменного согласия запрещена

13 Найдите объём правильной четырёхугольной пирамиды, сторона основания которой равна 6, а боковое ребро равно $\sqrt{67}$.

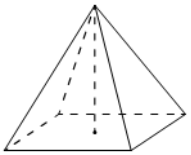

Ответ: _____

14 Найдите значение выражения $\dfrac{2}{1+\frac{1}{9}}$.

Ответ: _____

15 Магазин делает пенсионерам скидку. Батон хлеба стоит в магазине 15 рублей, а пенсионер заплатил за него 13 рублей 35 копеек. Сколько процентов составила скидка для пенсионера?

Ответ: _____

16 Найдите значение выражения $\left(\dfrac{11}{5}-\dfrac{13}{6}\right):\dfrac{1}{90}$.

Ответ: _____

17 Найдите корень уравнения $3^{3x-4}=3^{2x+2}$.

Ответ: _____

18 На координатной прямой отмечено число m.

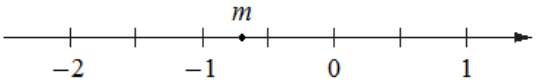

Каждому из четырёх чисел в левом столбце соответствует отрезок, которому оно принадлежит. Установите соответствие между числами и отрезками из правого столбца.

ЧИСЛА	ОТРЕЗКИ
А) $\sqrt{6-m}$	1) $[-2;\ -1]$
Б) m^2	2) $[0;\ 1]$
В) $m-1$	3) $[2;\ 3]$
Г) $-\dfrac{3}{m}$	4) $[4;\ 6]$

Впишите в приведённую в ответе таблицу под каждой буквой соответствующий отрезку номер.

Ответ:

А	Б	В	Г

© 2026 год. Вариант сгенерирован на сайте kim365.ru
Публикация в интернете или печатных изданиях без письменного согласия запрещена

19 Найдите трёхзначное число, кратное 70, все цифры которого различны, а сумма квадратов цифр делится на 5, но не делится на 25. В ответе укажите какое-нибудь одно такое число.

Ответ: _____

20 Расстояние между городами A и B равно 790 км. Из города A в город B выехал первый автомобиль, а через три часа после этого навстречу ему из города B выехал со скоростью 75 км/ч второй автомобиль. Найдите скорость первого автомобиля, если автомобили встретились на расстоянии 490 км от города A. Ответ дайте в км/ч.

Ответ: _____

21 В корзине лежит 37 грибов: рыжики и грузди. Известно, что среди любых 22 грибов имеется хотя бы один рыжик, а среди любых 17 грибов хотя бы один груздь. Сколько груздей в корзине?

Ответ: _____

© 2026 год. Вариант сгенерирован на сайте kim365.ru
Публикация в интернете или печатных изданиях без письменного согласия запрещена