Тренировочная работа в формате ЕГЭ
по МАТЕМАТИКЕ

Базовый уровень

Дата: __ _____ 2026 года

Вариант _____

Выполнена: ФИО_____ класс _____

Инструкция по выполнению работы

Работа по математике состоит из двух частей, включающих в себя 19 заданий. Часть 1 содержит 12 заданий с кратким ответом базового и повышенного уровней сложности. Часть 2 содержит 7 заданий с развёрнутым ответом повышенного и высокого уровней сложности.

На выполнение экзаменационной работы по математике отводится 3 часа 55 минут (235 минут).

Ответы к заданиям 1–12 записываются в виде целого числа или конечной десятичной дроби.

При выполнении заданий 13–19 требуется записать полное решение на отдельном листе бумаги.

При выполнении заданий можно пользоваться черновиком. **Записи в черновике, а также в тексте контрольных измерительных материалов не учитываются при оценивании работы.**

Баллы, полученные Вами за выполненные задания, суммируются. Постарайтесь выполнить как можно больше заданий и набрать наибольшее количество баллов.

После завершения работы проверьте, чтобы ответ на каждое задание был записан под правильным номером.

Желаем успеха!

© 2026 год. Вариант сгенерирован на сайте kim365.ru
Публикация в интернете или печатных изданиях без письменного согласия запрещена

Ответом к каждому заданию является конечная десятичная дробь, целое число или последовательность цифр. Запишите ответы к заданиям в поле ответа в тексте работы.

1 В квартире установлен прибор учёта расхода холодной воды (счётчик). Показания счётчика 1 июня составляли 178 куб. м воды, а 1 июля — 189 куб. м. Сколько нужно заплатить за холодную воду за июнь, если стоимость 1 куб. м холодной воды составляет 19 руб. 60 коп.? Ответ дайте в рублях.

Ответ: _____

2 Установите соответствие между величинами и их возможными значениями: к каждому элементу первого столбца подберите соответствующий элемент из второго столбца.

ВЕЛИЧИНЫ	**ЗНАЧЕНИЯ**
А) площадь почтовой марки	**1)** 162 кв. м
Б) площадь письменного стола	**2)** 0,9 кв. м
В) площадь города Санкт-Петербурга	**3)** 1439 кв. км
Г) площадь волейбольной площадки	**4)** 5,2 кв. см

В таблице под каждой буквой, соответствующей величине, укажите номер её возможного значения.

Ответ:

А	**Б**	**В**	**Г**

3 На рисунке жирными точками показана среднесуточная температура воздуха в Бресте каждый день с 6 по 18 июля 1981 года. По горизонтали указываются числа месяца, по вертикали — температура в градусах Цельсия. Для наглядности жирные точки соединены линиями. Определите по рисунку, сколько дней из данного периода среднесуточная температура была выше 18 градусов Цельсия.

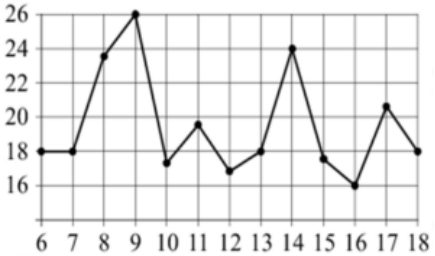

Ответ: _____

4 Если p_1, p_2 и p_3 — различные простые числа, то сумма всех делителей числа $p_1 \cdot p_2 \cdot p_3$ равна $(p_1+1)(p_2+1)(p_3+1)$. Найдите сумму всех делителей числа $174 = 2 \cdot 3 \cdot 29$.

Ответ: _____

© 2026 год. Вариант сгенерирован на сайте kim365.ru
Публикация в интернете или печатных изданиях без письменного согласия запрещена

5 В среднем из 1000 садовых насосов, поступивших в продажу, 4 насоса подтекают. Найдите вероятность того, что один случайно выбранный для контроля насос **не подтекает**.

Ответ: _____

6 Для обслуживания международного семинара необходимо собрать группу переводчиков. Сведения о кандидатах представлены в таблице.

Номер переводчика	Языки	Стоимость услуг (руб. в день)
1	Английский, немецкий	5950
2	Французский	3950
3	Английский, испанский	6050
4	Испанский, французский	6850
5	Немецкий	1900
6	Английский	3150

Пользуясь таблицей, соберите хотя бы одну группу, в которой переводчики вместе владеют всеми четырьмя языками: английским, немецким, испанским и французским, а суммарная стоимость их услуг не превышает 12 000 рублей в день. В ответе укажите какой-нибудь один набор номеров переводчиков без пробелов, запятых и других дополнительных символов.

Ответ: _____

7 На рисунке изображены график функции и касательные, проведённые к нему в точках с абсциссами A, B, C и D.

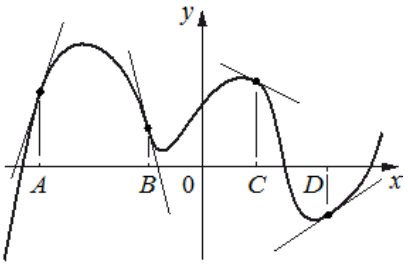

В правом столбце указаны значения производной функции в точках A, B, C и D. Пользуясь графиком, поставьте в соответствие каждой точке значение производной функции в ней.

ТОЧКИ	**ЗНАЧЕНИЯ ПРОИЗВОДНОЙ**
A	1) -4
B	2) 3
C	3) $\frac{2}{3}$
D	4) $-\frac{1}{2}$

В таблице для каждой точки укажите номер соответствующего значения производной.

Ответ:

A	B	C	D

© 2026 год. Вариант сгенерирован на сайте kim365.ru
Публикация в интернете или печатных изданиях без письменного согласия запрещена

8 Хозяйка к празднику купила морс, мороженое, крабовые палочки и рыбу. Мороженое стоило дороже крабовых палочек, но дешевле рыбы, морс стоил дешевле мороженого. Выберите все утверждения, которые верны при указанных условиях.

1) Морс стоил дешевле рыбы.
2) За морс заплатили больше, чем за мороженое.
3) Рыба — самая дорогая из покупок.
4) Среди указанных четырёх покупок есть три, стоимость которых одинакова.

В ответе запишите номера выбранных утверждений без пробелов, запятых и других дополнительных символов.

Ответ: _____

9 План местности разбит на клетки. Каждая клетка обозначает квадрат 1 м $\times$ 1 м. Найдите площадь участка, выделенного на плане. Ответ дайте в квадратных метрах.

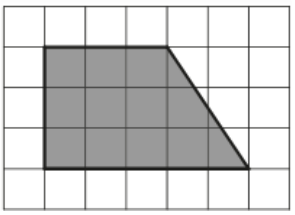

Ответ: _____

10 Столб подпирает детскую горку посередине. Найдите высоту *l* этого столба, если высота *h* горки равна 3,8 м. Ответ дайте в метрах.

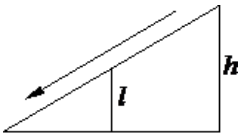

Ответ: _____

11 В бак, имеющий форму правильной четырёхугольной призмы, налито 12 л воды. После полного погружения в воду детали уровень воды в баке увеличился в 1,5 раза. Найдите объём детали. Ответ дайте в кубических сантиметрах, зная, что в одном литре 1000 кубических сантиметров.

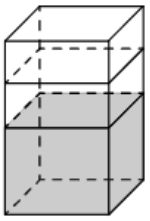

Ответ: _____

12 В окружности с центром O отрезки AC и BD — диаметры. Центральный угол AOD равен 112°. Найдите угол ACB. Ответ дайте в градусах.

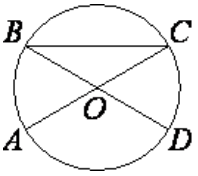

Ответ: _____

© 2026 год. Вариант сгенерирован на сайте kim365.ru
Публикация в интернете или печатных изданиях без письменного согласия запрещена

13 Стороны основания правильной шестиугольной пирамиды равны 12, боковые рёбра равны 10. Найдите площадь боковой поверхности этой пирамиды.

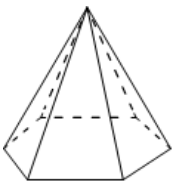

Ответ: _____

14 Найдите значение выражения $(7{,}6 - 3{,}1) \cdot 6{,}8$.

Ответ: _____

15 В спортивном магазине любой свитер стоит 450 рублей. Сейчас магазин проводит акцию: при покупке двух свитеров — скидка на второй свитер 30%. Сколько рублей придётся заплатить за покупку двух свитеров в период действия акции?

Ответ: _____

16 Найдите значение выражения $(0{,}1)^2 \cdot 10^3 : 2^{-2}$.

Ответ: _____

17 Найдите корень уравнения $6^{2x-6} \cdot 6^{5-3x} = 216$.

Ответ: _____

18 Число m равно $\sqrt{0{,}5}$.

Каждому из четырёх чисел в левом столбце соответствует отрезок, которому оно принадлежит. Установите соответствие между числами и отрезками из правого столбца.

ЧИСЛА	**ОТРЕЗКИ**
А) $\sqrt{6+m}$	**1)** $[-2;\ -1]$
Б) $-m-1$	**2)** $[0;\ 1]$
В) m^2	**3)** $[2;\ 3]$
Г) $\dfrac{3}{m}$	**4)** $[4;\ 5]$

Впишите в приведённую в ответе таблицу под каждой буквой соответствующий отрезку номер.

Ответ:

А	**Б**	**В**	**Г**

© 2026 год. Вариант сгенерирован на сайте kim365.ru
Публикация в интернете или печатных изданиях без письменного согласия запрещена

19 Найдите трёхзначное натуральное число, которое при делении и на 5, и на 9 даёт в остатке 1 и цифры в записи которого расположены в порядке убывания слева направо. В ответе запишите какое-нибудь одно такое число.

Ответ: _____

20 Первый час автомобиль ехал со скоростью 80 км/ч, следующие два часа — со скоростью 75 км/ч, а затем два часа — со скоростью 50 км/ч. Найдите среднюю скорость автомобиля на протяжении всего пути. Ответ дайте в км/ч.

Ответ: _____

21 Список заданий викторины состоял из 33 вопросов. За каждый правильный ответ ученик получал 7 очков, за неправильный ответ с него списывали 13 очков, а при отсутствии ответа давали 0 очков. Сколько верных ответов дал ученик, набравший 56 очков, если известно, что по крайней мере один раз он ошибся?

Ответ: _____

© 2026 год. Вариант сгенерирован на сайте kim365.ru
Публикация в интернете или печатных изданиях без письменного согласия запрещена