Тренировочная работа в формате ОГЭ

по МАТЕМАТИКЕ

Дата: __ _____ 2026 года

Вариант _____

Выполнена: ФИО_____ класс _____

Инструкция по выполнению работы

Работа состоит из двух частей, включающих в себя 25 заданий. Часть 1 содержит 19 заданий, часть 2 содержит 6 задананий с развёрнутым ответом.

На выполнение работы по математике отводится 3 часа 55 минут (235 минут).

Ответы к заданиям 7 и 13 запишите в виде одной цифры, которая соответствует номеру правильного ответа.

Для остальных заданий части 1 ответом является число или последовательность цифр. Если получилась обыкновенная дробь, ответ запишите в виде десятичной.

Решения заданий части 2 и ответы к ним запишите на отдельном листе бумаги. Задания можно выполнять в любом порядке. Текст задания переписывать не надо, необходимо только указать его номер.

Сначала выполняйте задания части 1. Начать советуем с тех заданий, которые вызывают у Вас меньше затруднений, затем переходите к другим заданиям. Для экономии времени пропускайте задание, которое не удаётся выполнить сразу, и переходите к следующему. Если у Вас останется время, Вы сможете вернуться к пропущенным заданиям.

При выполнении части 1 все необходимые вычисления, преобразования выполняйте в черновике. **Записи в черновике не учитываются при оценивании работы.**

Если задание содержит рисунок, то на нём непосредственно в тексте работы можно выполнять необходимые Вам построения. Рекомендуем внимательно читать условие и проводить проверку полученного ответа.

При выполнении работы Вы можете воспользоваться справочными материалами, выданными вместе с вариантом КИМ, и линейкой.

Баллы, полученные Вами за выполненные задания, суммируются.

Постарайтесь выполнить как можно больше заданий и набрать наибольшее количество баллов.

После завершения работы проверьте, чтобы ответ на каждое задание был записан под правильным номером.

Желаем успеха!

© 2026 год. Вариант сгенерирован на сайте kim365.ru
Публикация в интернете или печатных изданиях без письменного согласия запрещена

Часть 1

Ответами к заданиям 1-19 являются число или последовательность цифр.

Прочитайте внимательно текст и выполните задания 1-5.

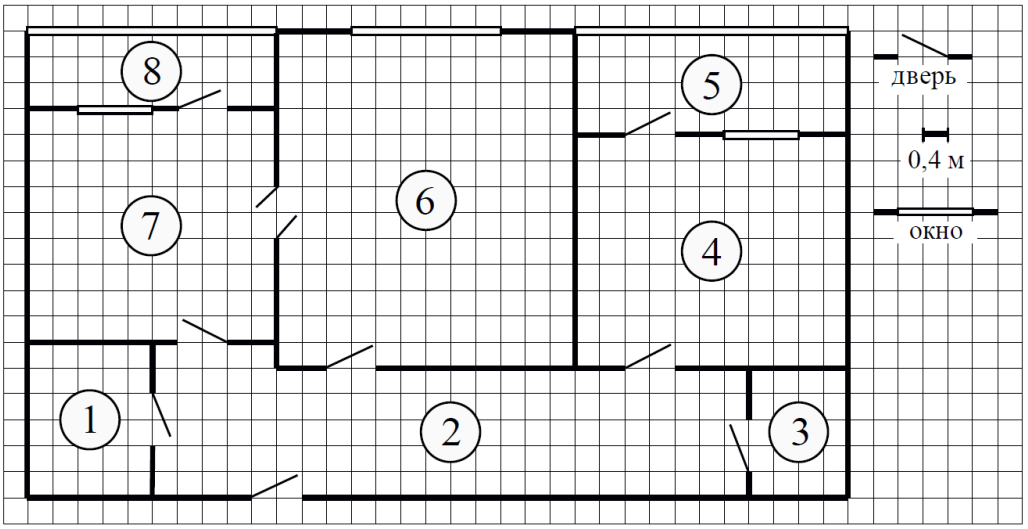

На рисунке изображён план двухкомнатной квартиры в многоэтажном жилом доме. Сторона одной клетки на плане соответствует 0,4 м, а условные обозначения двери и окна приведены в правой части рисунка.

Вход в квартиру находится в коридоре. Слева от входа в квартиру находится санузел, а в противоположном конце коридора — дверь в кладовую. Рядом с кладовой находится спальня, из которой можно пройти на одну из застеклённых лоджий. Самое большое по площади помещение — гостиная, откуда можно п опасть в коридор и на кухню. Из кухни также можно попасть на застеклённую лоджию.

1 Для объектов, указанных в таблице, определите, какими цифрами они обозначены на плане. Заполните таблицу, в бланк перенесите последовательность четырёх цифр без пробелов, запятых и других дополнительных символов.

Объекты	коридор	кладовая	спальня	кухня
Цифры				

2 Паркетная доска размером 20 см на 80 см продаётся в упаковках по 12 штук. Сколько упаковок паркетной доски понадобилось, чтобы выложить пол в кладовой?

Ответ: _____

3 Найдите площадь коридора. Ответ дайте в квадратных метрах.

Ответ: _____

© 2026 год. Вариант сгенерирован на сайте kim365.ru
Публикация в интернете или печатных изданиях без письменного согласия запрещена

4 На сколько процентов площадь коридора больше площади кладовой?

Ответ: _____

5 В квартире планируется подключить интернет. Предполагается, что трафик составит 650 Мб в месяц, и исходя из этого выбирается наиболее дешёвый вариант. Интернет-провайдер предлагает три тарифных плана.

Тарифный план	Абонентская плата	Плата за трафик
План «500»	600 руб. за 500 Мб трафика в месяц	2 руб. за 1 Мб сверх 500 Мб
План «1000»	820 руб. за 1000 Мб трафика в месяц	1,5 руб. за 1 Мб сверх 1000 Мб
План «Безлимитный»	900 руб. за неограниченное количество Мб трафика	_____

Сколько рублей нужно будет заплатить за интернет за месяц, если трафик действительно будет равен 650 Мб?

Ответ: _____

6 Найдите значение выражения $\frac{7}{8} : \frac{5}{6}$.

Ответ: _____

7 Какому из данных промежутков принадлежит число $\frac{5}{9}$?

1) $[0{,}5\,;\,0{,}6]$

2) $[0{,}6\,;\,0{,}7]$

3) $[0{,}7\,;\,0{,}8]$

4) $[0{,}8\,;\,0{,}9]$

Ответ: ☐

8 Найдите значение выражения $\frac{11^{-3} \cdot 11^{12}}{11^{8}}$.

Ответ: _____

9 Решите уравнение $x^2 - 144 = 0$.
Если уравнение имеет более одного корня, в ответ запишите больший из корней.

Ответ: _____

© 2026 год. Вариант сгенерирован на сайте kim365.ru
Публикация в интернете или печатных изданиях без письменного согласия запрещена

10 Вероятность того, что новая шариковая ручка пишет плохо (или не пишет), равна 0,14. Покупатель в магазине выбирает одну шариковую ручку. Найдите вероятность того, что эта ручка пишет хорошо.

Ответ: _____

11 Установите соответствие между графиками функций и формулами, которые их задают.

ГРАФИКИ

А)

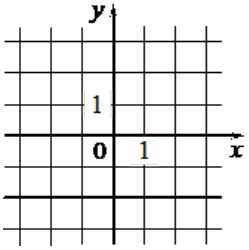

Б)

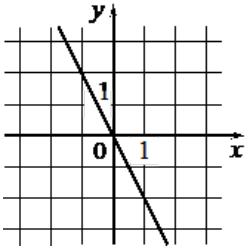

В)

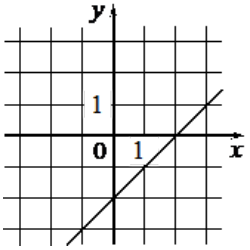

ФОРМУЛЫ

1) $y = -2$ **2)** $y = x - 2$ **3)** $y = -2x$

В таблице под каждой буквой укажите соответствующий номер.

Ответ:

А	Б	В

12 В фирме «Чистая вода» стоимость (в рублях) колодца из железобетонных колец рассчитывается по формуле $C = 6500 + 4000n$, где n — число колец, установленных в колодце. Пользуясь этой формулой, рассчитайте стоимость колодца из 11 колец. Ответ дайте в рублях.

Ответ: _____

13 Укажите решение системы неравенств

$$\begin{cases} -9 + 3x > 0, \\ 2 - 3x > -10. \end{cases}$$

1) нет решений

2)

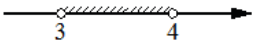

3)

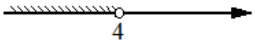

4)

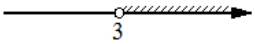

Ответ:

© 2026 год. Вариант сгенерирован на сайте kim365.ru
Публикация в интернете или печатных изданиях без письменного согласия запрещена

14 В амфитеатре 23 ряда, причём в каждом следующем ряду на одно и то же число мест больше, чем в предыдущем. В пятом ряду 27 мест, а в седьмом ряду 31 место. Сколько мест в последнем ряду амфитеатра?

Ответ: _____

15 В треугольнике ABC известно, что $AB = BC$, $\angle ABC = 104^\circ$. Найдите угол BCA. Ответ дайте в градусах.

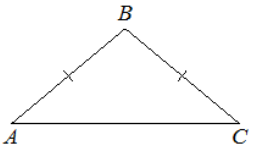

Ответ: _____

16 В треугольнике ABC угол C равен 45°, $AB = 8\sqrt{2}$. Найдите радиус окружности, описанной около этого треугольника.

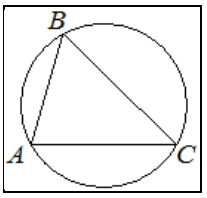

Ответ: _____

17 Сумма двух углов равнобедренной трапеции равна 50°. Найдите больший угол этой трапеции. Ответ дайте в градусах.

Ответ: _____

18 На клетчатой бумаге с размером клетки 1×1 изображён параллелограмм. Найдите его площадь.

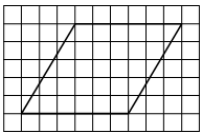

Ответ: _____

19 Какое из следующих утверждений является истинным высказыванием?

1) Основания любой трапеции параллельны.
2) Все углы ромба равны.
3) Две окружности пересекаются, если радиус одной из них больше радиуса другой.

В ответ запишите номер истинного высказывания.

Ответ: _____

© 2026 год. Вариант сгенерирован на сайте kim365.ru
Публикация в интернете или печатных изданиях без письменного согласия запрещена

Часть 2

При выполнении заданий 20-25 используйте отдельный лист бумаги. Сначала укажите номер задания, а затем запишите его решение и ответ. Пишите чётко и разборчиво.

20 Решите неравенство $\dfrac{-12}{(x-1)^2-2} \geq 0$.

21 Первый рабочий за час делает на 10 деталей больше, чем второй, и выполняет заказ, состоящий из 60 деталей, на 3 часа быстрее, чем второй рабочий, выполняющий такой же заказ. Сколько деталей в час делает первый рабочий?

22 Постройте график функции $y = \begin{cases} x^2 - 6x + 6 & \text{при} \quad x \geq 2, \\ x - 3 & \text{при} \quad x < 2. \end{cases}$

Определите, при каких значениях *m* прямая $y = m$ имеет с графиком две общие точки.

23 Углы *B* и *C* треугольника *ABC* равны соответственно 73° и 77°. Найдите *BC*, если радиус окружности, описанной около треугольника *ABC*, равен 9.

24 В выпуклом четырёхугольнике *ABCD* углы *CDB* и *CAB* равны. Докажите, что углы *BCA* и *BDA* также равны.

25 Биссектриса угла *A* параллелограмма *ABCD* пересекает сторону *BC* в точке *K*. Найдите периметр параллелограмма, если *BK* = 8, *CK* = 13.

© 2026 год. Вариант сгенерирован на сайте kim365.ru
Публикация в интернете или печатных изданиях без письменного согласия запрещена