Тренировочная работа в формате ОГЭ

по МАТЕМАТИКЕ

Дата: __ _____ 2026 года

Вариант _____

Выполнена: ФИО_____ класс _____

Инструкция по выполнению работы

Работа состоит из двух частей, включающих в себя 25 заданий. Часть 1 содержит 19 заданий, часть 2 содержит 6 задананий с развёрнутым ответом.

На выполнение работы по математике отводится 3 часа 55 минут (235 минут).

Ответы к заданиям 7 и 13 запишите в виде одной цифры, которая соответствует номеру правильного ответа.

Для остальных заданий части 1 ответом является число или последовательность цифр. Если получилась обыкновенная дробь, ответ запишите в виде десятичной.

Решения заданий части 2 и ответы к ним запишите на отдельном листе бумаги. Задания можно выполнять в любом порядке. Текст задания переписывать не надо, необходимо только указать его номер.

Сначала выполняйте задания части 1. Начать советуем с тех заданий, которые вызывают у Вас меньше затруднений, затем переходите к другим заданиям. Для экономии времени пропускайте задание, которое не удаётся выполнить сразу, и переходите к следующему. Если у Вас останется время, Вы сможете вернуться к пропущенным заданиям.

При выполнении части 1 все необходимые вычисления, преобразования выполняйте в черновике. **Записи в черновике не учитываются при оценивании работы.**

Если задание содержит рисунок, то на нём непосредственно в тексте работы можно выполнять необходимые Вам построения. Рекомендуем внимательно читать условие и проводить проверку полученного ответа.

При выполнении работы Вы можете воспользоваться справочными материалами, выданными вместе с вариантом КИМ, и линейкой.

Баллы, полученные Вами за выполненные задания, суммируются.

Постарайтесь выполнить как можно больше заданий и набрать наибольшее количество баллов.

После завершения работы проверьте, чтобы ответ на каждое задание был записан под правильным номером.

Желаем успеха!

© 2026 год. Вариант сгенерирован на сайте kim365.ru
Публикация в интернете или печатных изданиях без письменного согласия запрещена

Часть 1

Ответами к заданиям 1-19 являются число или последовательность цифр.

Прочитайте внимательно текст и выполните задания 1-5.

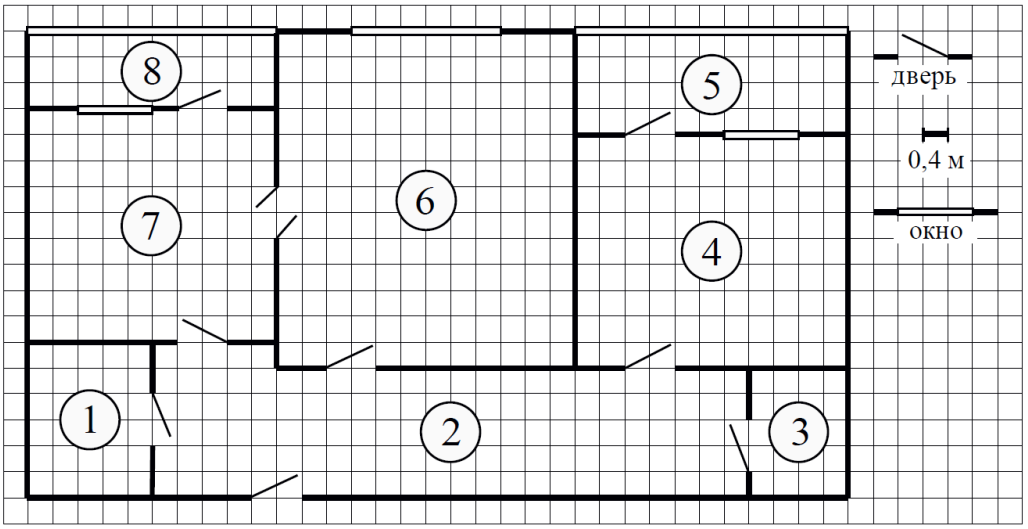

На рисунке изображён план двухкомнатной квартиры в многоэтажном жилом доме. Сторона одной клетки на плане соответствует 0,4 м, а условные обозначения двери и окна приведены в правой части рисунка.

Вход в квартиру находится в коридоре. Слева от входа в квартиру находится санузел, а в противоположном конце коридора — дверь в кладовую. Рядом с кладовой находится спальня, из которой можно пройти на одну из застеклённых лоджий. Самое большое по площади помещение — гостиная, откуда можно п опасть в коридор и на кухню. Из кухни также можно попасть на застеклённую лоджию.

1 Для объектов, указанных в таблице, определите, какими цифрами они обозначены на плане. Заполните таблицу, в бланк перенесите последовательность четырёх цифр без пробелов, запятых и других дополнительных символов.

Объекты	коридор	санузел	спальня	гостиная
Цифры				

2 Плитка для пола размером 40 см на 40 см продаётся в упаковках по 12 штук. Сколько упаковок плитки понадобилось, чтобы выложить пол на кухне?

Ответ: _____

3 Найдите площадь меньшей лоджии. Ответ дайте в квадратных метрах.

Ответ: _____

© 2026 год. Вариант сгенерирован на сайте kim365.ru
Публикация в интернете или печатных изданиях без письменного согласия запрещена

4 На сколько процентов площадь лоджии, примыкающей к кухне, больше площади кладовой?

Ответ: _____

5 В квартире планируется подключить интернет. Предполагается, что трафик составит 850 Мб в месяц, и исходя из этого выбирается наиболее дешёвый вариант. Интернет-провайдер предлагает три тарифных плана.

Тарифный план	Абонентская плата	Плата за трафик
План «800»	900 руб. за 800 Мб трафика в месяц	2 руб. за 1 Мб сверх 800 Мб
План «1000»	1050 руб. за 1000 Мб трафика в месяц	1,5 руб. за 1 Мб сверх 1000 Мб
План «Безлимитный»	1100 руб. за неограниченное количество Мб трафика	_____

Сколько рублей нужно будет заплатить за интернет за месяц, если трафик действительно будет равен 850 Мб?

Ответ: _____

6 Найдите значение выражения $8{,}8 + 5{,}9$.

Ответ: _____

7 На координатной прямой точки A, B, C и D соответствуют числам $-0{,}39$; $-0{,}09$; $-0{,}93$; $0{,}03$.

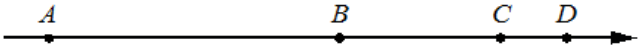

Какой точке соответствует число $-0{,}09$?

1) A

2) B

3) C

4) D

Ответ: ☐

8 Найдите значение выражения $\sqrt{(-a)^2 \cdot a^4}$ при $a = 3$.

Ответ: _____

© 2026 год. Вариант сгенерирован на сайте kim365.ru
Публикация в интернете или печатных изданиях без письменного согласия запрещена

9 Найдите корень уравнения $3x + 3 = 5x$.

Ответ: _____

10 Вероятность того, что новая шариковая ручка пишет плохо (или не пишет), равна 0,22. Покупатель в магазине выбирает одну шариковую ручку. Найдите вероятность того, что эта ручка пишет хорошо.

Ответ: _____

11 Установите соответствие между графиками функций и формулами, которые их задают.

ГРАФИКИ

А)

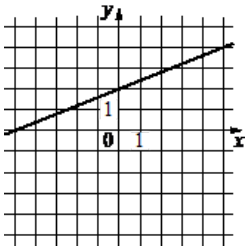

Б)

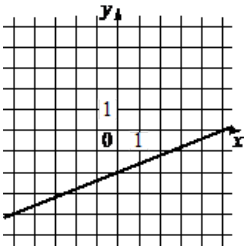

В)

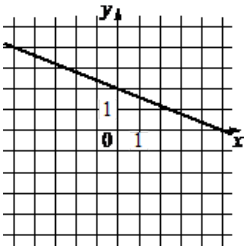

ФОРМУЛЫ

1) $y = \frac{2}{5}x + 2$ **2)** $y = \frac{2}{5}x - 2$ **3)** $y = -\frac{2}{5}x + 2$

В таблице под каждой буквой укажите соответствующий номер.

Ответ:

А	Б	В

12 Центростремительное ускорение при движении по окружности $\left(\text{в м/с}^2\right)$ вычисляется по формуле $a = \omega^2 R$, где ω — угловая скорость $\left(\text{в с}^{-1}\right)$, R — радиус окружности (в метрах). Пользуясь этой формулой, найдите радиус R, если угловая скорость равна $6\,\text{с}^{-1}$, а центростремительное ускорение равно $18\,\text{м/с}^2$. Ответ дайте в метрах.

Ответ: _____

© 2026 год. Вариант сгенерирован на сайте kim365.ru
Публикация в интернете или печатных изданиях без письменного согласия запрещена

13 Укажите решение неравенства

$$81x^2 \leq 16.$$

1)

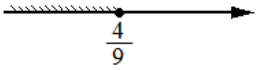

2)



3)

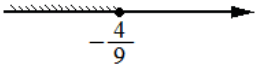

4)



Ответ: ☐

14 Водитель автомобиля начал торможение. За секунду после начала торможения автомобиль проехал 16 м, а за каждую следующую секунду он проезжал на 2 м меньше, чем за предыдущую. Сколько метров автомобиль прошёл до полной остановки?

Ответ: _____

15 Два катета прямоугольного треугольника равны 11 и 6. Найдите площадь этого треугольника.

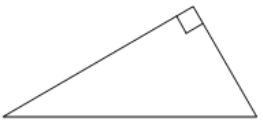

Ответ: _____

16 В треугольнике ABC известно, что $AC = 12$, $BC = 5$, угол C равен 90°. Найдите радиус описанной около этого треугольника окружности.

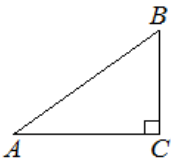

Ответ: _____

17 Основания трапеции равны 4 и 14, а высота равна 8. Найдите среднюю линию этой трапеции.

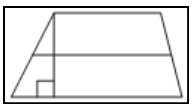

Ответ: _____

© 2026 год. Вариант сгенерирован на сайте kim365.ru
Публикация в интернете или печатных изданиях без письменного согласия запрещена

18 На клетчатой бумаге с размером клетки 1×1 изображён треугольник. Найдите его площадь.

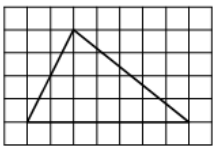

Ответ: _____

19 Какие из следующих утверждений являются истинными высказываниями?

1) Треугольника со сторонами 1, 2, 4 не существует.

2) Площадь трапеции равна произведению основания трапеции на высоту.

3) Все диаметры окружности равны между собой.

В ответ запишите номера истинных высказываний без пробелов, запятых и других дополнительных символов.

Ответ: _____

© 2026 год. Вариант сгенерирован на сайте kim365.ru
Публикация в интернете или печатных изданиях без письменного согласия запрещена

Часть 2

При выполнении заданий 20-25 используйте отдельный лист бумаги. Сначала укажите номер задания, а затем запишите его решение и ответ. Пишите чётко и разборчиво.

20 Найдите значение выражения $28a - 7b + 40$, если $\dfrac{2a - 5b + 7}{5a - 2b + 7} = 6$.

21 Первую половину пути автомобиль проехал со скоростью 36 км/ч, а вторую — со скоростью 99 км/ч. Найдите среднюю скорость автомобиля на протяжении всего пути.

22 Постройте график функции $y = \dfrac{\left(0,25x^2 + 0,5x\right) \cdot |x|}{x + 2}$.

Определите, при каких значениях m прямая $y = m$ не имеет с графиком ни одной общей точки.

23 Точка H является основанием высоты, проведённой из вершины прямого угла B треугольника ABC к гипотенузе AC. Найдите AB, если $AH = 7$, $AC = 28$.

24 Биссектрисы углов B и C параллелограмма $ABCD$ пересекаются в точке M, лежащей на стороне AD. Докажите, что M — середина AD.

25 Точка H является основанием высоты BH, проведённой из вершины прямого угла B прямоугольного треугольника ABC. Окружность с диаметром BH пересекает стороны AB и CB в точках P и K соответственно. Найдите PK, если $BH = 14$.

© 2026 год. Вариант сгенерирован на сайте kim365.ru
Публикация в интернете или печатных изданиях без письменного согласия запрещена