Тренировочная работа в формате ОГЭ

по МАТЕМАТИКЕ

Дата: __ _____ 2026 года

Вариант _____

Выполнена: ФИО_____ класс _____

Инструкция по выполнению работы

Работа состоит из двух частей, включающих в себя 25 заданий. Часть 1 содержит 19 заданий, часть 2 содержит 6 задананий с развёрнутым ответом.

На выполнение работы по математике отводится 3 часа 55 минут (235 минут).

Ответы к заданиям 7 и 13 запишите в виде одной цифры, которая соответствует номеру правильного ответа.

Для остальных заданий части 1 ответом является число или последовательность цифр. Если получилась обыкновенная дробь, ответ запишите в виде десятичной.

Решения заданий части 2 и ответы к ним запишите на отдельном листе бумаги. Задания можно выполнять в любом порядке. Текст задания переписывать не надо, необходимо только указать его номер.

Сначала выполняйте задания части 1. Начать советуем с тех заданий, которые вызывают у Вас меньше затруднений, затем переходите к другим заданиям. Для экономии времени пропускайте задание, которое не удаётся выполнить сразу, и переходите к следующему. Если у Вас останется время, Вы сможете вернуться к пропущенным заданиям.

При выполнении части 1 все необходимые вычисления, преобразования выполняйте в черновике. **Записи в черновике не учитываются при оценивании работы.**

Если задание содержит рисунок, то на нём непосредственно в тексте работы можно выполнять необходимые Вам построения. Рекомендуем внимательно читать условие и проводить проверку полученного ответа.

При выполнении работы Вы можете воспользоваться справочными материалами, выданными вместе с вариантом КИМ, и линейкой.

Баллы, полученные Вами за выполненные задания, суммируются.

Постарайтесь выполнить как можно больше заданий и набрать наибольшее количество баллов.

После завершения работы проверьте, чтобы ответ на каждое задание был записан под правильным номером.

Желаем успеха!

© 2026 год. Вариант сгенерирован на сайте kim365.ru
Публикация в интернете или печатных изданиях без письменного согласия запрещена

Часть 1

Ответами к заданиям 1-19 являются число или последовательность цифр.

Прочитайте внимательно текст и выполните задания 1-5.

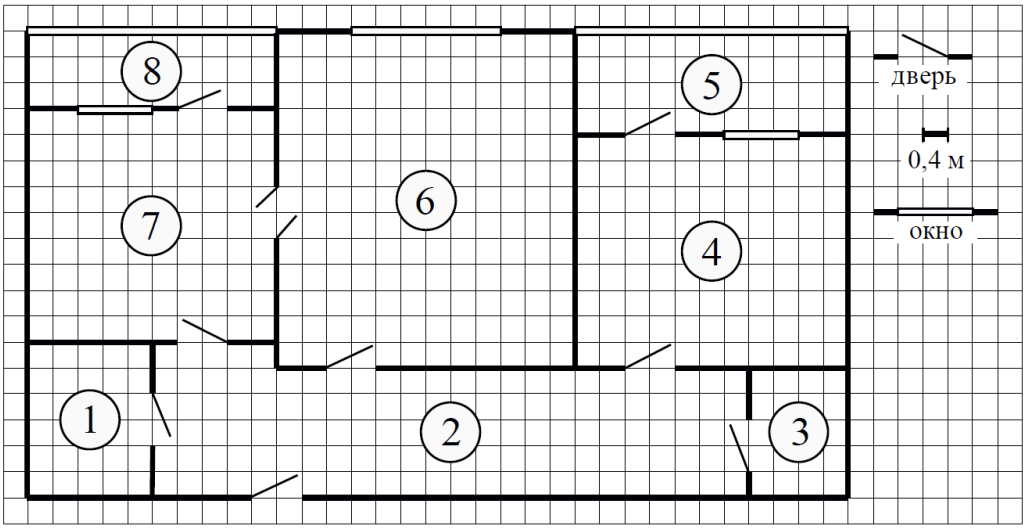

На рисунке изображён план двухкомнатной квартиры в многоэтажном жилом доме. Сторона одной клетки на плане соответствует 0,4 м, а условные обозначения двери и окна приведены в правой части рисунка.

Вход в квартиру находится в коридоре. Слева от входа в квартиру находится санузел, а в противоположном конце коридора — дверь в кладовую. Рядом с кладовой находится спальня, из которой можно пройти на одну из застеклённых лоджий. Самое большое по площади помещение — гостиная, откуда можно п опасть в коридор и на кухню. Из кухни также можно попасть на застеклённую лоджию.

1 Для объектов, указанных в таблице, определите, какими цифрами они обозначены на плане. Заполните таблицу, в бланк перенесите последовательность четырёх цифр без пробелов, запятых и других дополнительных символов.

Объекты	коридор	кладовая	спальня	санузел
Цифры				

2 Паркетная доска размером 20 см на 40 см продаётся в упаковках по 8 штук. Сколько упаковок паркетной доски понадобилось, чтобы выложить пол в коридоре?

Ответ: _____

3 Найдите площадь спальни. Ответ дайте в квадратных метрах.

Ответ: _____

© 2026 год. Вариант сгенерирован на сайте kim365.ru
Публикация в интернете или печатных изданиях без письменного согласия запрещена

4 На сколько процентов площадь гостиной больше площади кладовой?

Ответ: _____

5 В квартире планируется подключить интернет. Предполагается, что трафик составит 1000 Мб в месяц, и исходя из этого выбирается наиболее дешёвый вариант. Интернет-провайдер предлагает три тарифных плана.

Тарифный план	Абонентская плата	Плата за трафик
План «600»	650 руб. за 600 Мб трафика в месяц	2 руб. за 1 Мб сверх 600 Мб
План «900»	820 руб. за 900 Мб трафика в месяц	1,5 руб. за 1 Мб сверх 900 Мб
План «Безлимитный»	950 руб. за неограниченное количество Мб трафика	_____

Сколько рублей нужно будет заплатить за интернет за месяц, если трафик действительно будет равен 1000 Мб?

Ответ: _____

6 Найдите значение выражения $6{,}1 - 2{,}5$.

Ответ: _____

7 На координатной прямой отмечены точки A, B, C, D. Одна из них соответствует числу $\sqrt{76}$. Какая это точка?

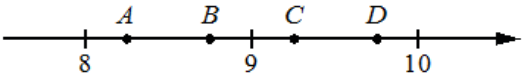

1) точка A

2) точка B

3) точка C

4) точка D

Ответ: ☐

8 Найдите значение выражения $\sqrt{\frac{1}{25} \cdot x^8 y^2}$ при $x = 3$ и $y = 5$.

Ответ: _____

© 2026 год. Вариант сгенерирован на сайте kim365.ru
Публикация в интернете или печатных изданиях без письменного согласия запрещена

9 Решите уравнение $x^2 - 11x + 18 = 0$.
Если уравнение имеет более одного корня, в ответ запишите больший из корней.

Ответ: _____

10 Родительский комитет закупил 10 пазлов для подарков детям в связи с окончанием учебного года, из них 5 с машинами и 5 с видами городов. Подарки распределяются случайным образом между 10 детьми, среди которых есть Витя. Найдите вероятность того, что Вите достанется пазл с машиной.

Ответ: _____

11 На рисунках изображены графики функций вида $y = kx + b$. Установите соответствие между графиками функций и знаками коэффициентов k и b.

ГРАФИКИ

А)

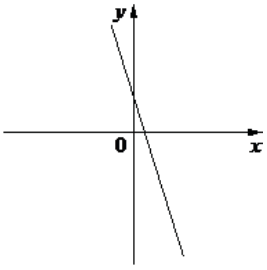

Б)

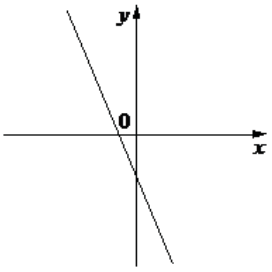

В)

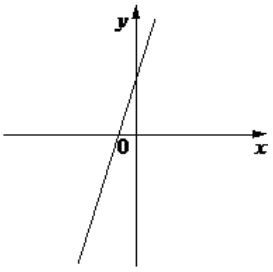

КОЭФФИЦИЕНТЫ

1) $k < 0, b < 0$ **2)** $k > 0, b > 0$ **3)** $k < 0, b > 0$

В таблице под каждой буквой укажите соответствующий номер.

Ответ:

А	Б	В

12 В фирме «Родник» стоимость (в рублях) колодца из железобетонных колец рассчитывается по формуле $C = 6000 + 4100n$, где n — число колец, установленных в колодце. Пользуясь этой формулой, рассчитайте стоимость колодца из 5 колец. Ответ дайте в рублях.

Ответ: _____

© 2026 год. Вариант сгенерирован на сайте kim365.ru
Публикация в интернете или печатных изданиях без письменного согласия запрещена

13 Укажите решение системы неравенств

$$\begin{cases} x - 4{,}3 \geq 0, \\ x + 5 \leq 10. \end{cases}$$

1) 

2) 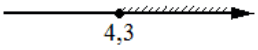

3) 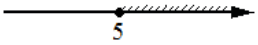

4) 

Ответ: ☐

14 В амфитеатре 11 рядов. В первом ряду 18 мест, а в каждом следующем на 3 места больше, чем в предыдущем. Сколько всего мест в амфитеатре?

Ответ: _____

15 Сторона равностороннего треугольника равна $14\sqrt{3}$. Найдите биссектрису этого треугольника.

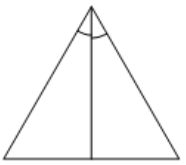

Ответ: _____

16 Отрезки AC и BD — диаметры окружности с центром в точке O. Угол ACB равен 74°. Найдите угол AOD. Ответ дайте в градусах.

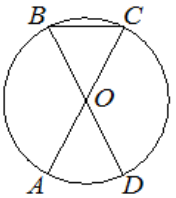

Ответ: _____

17 Основания трапеции равны 7 и 11, а высота равна 7. Найдите площадь этой трапеции.

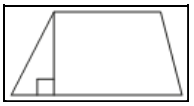

Ответ: _____

© 2026 год. Вариант сгенерирован на сайте kim365.ru
Публикация в интернете или печатных изданиях без письменного согласия запрещена

18 На клетчатой бумаге с размером клетки 1×1 изображены две точки. Найдите расстояние между ними.

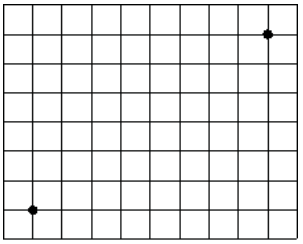

Ответ: _____

19 Какие из следующих утверждений являются истинными высказываниями?

1) Площадь треугольника меньше произведения двух его сторон.
2) Через заданную точку плоскости можно провести только одну прямую.
3) Если два угла одного треугольника равны двум углам другого треугольника, то такие треугольники подобны.

В ответ запишите номера истинных высказываний без пробелов, запятых и других дополнительных символов.

Ответ: _____

© 2026 год. Вариант сгенерирован на сайте kim365.ru
Публикация в интернете или печатных изданиях без письменного согласия запрещена

Часть 2

При выполнении заданий 20-25 используйте отдельный лист бумаги. Сначала укажите номер задания, а затем запишите его решение и ответ. Пишите чётко и разборчиво.

20 Решите неравенство $\dfrac{-18}{(x+4)^2-10} \geq 0$.

21 Поезд, двигаясь равномерно со скоростью 36 км/ч, проезжает мимо пешехода, идущего по платформе параллельно путям со скоростью 4 км/ч навстречу поезду, за 54 секунды. Найдите длину поезда в метрах.

22 Постройте график функции $y = \dfrac{\left(0,75x^2 - 1,5x\right) \cdot |x|}{x-2}$.

Определите, при каких значениях *m* прямая $y = m$ не имеет с графиком ни одной общей точки.

23 Катет и гипотенуза прямоугольного треугольника равны 21 и 75. Найдите высоту, проведённую к гипотенузе.

24 В выпуклом четырёхугольнике *ABCD* углы *CDB* и *CAB* равны. Докажите, что углы *BCA* и *BDA* также равны.

25 Точка *H* является основанием высоты *BH*, проведённой из вершины прямого угла *B* прямоугольного треугольника *ABC*. Окружность с диаметром *BH* пересекает стороны *AB* и *CB* в точках *P* и *K* соответственно. Найдите *PK*, если *BH* = 14.

© 2026 год. Вариант сгенерирован на сайте kim365.ru
Публикация в интернете или печатных изданиях без письменного согласия запрещена