Тренировочная работа в формате ЕГЭ
по МАТЕМАТИКЕ

Базовый уровень

Дата: __ _____ 2026 года

Вариант _____

Выполнена: ФИО_____ класс _____

Инструкция по выполнению работы

Работа по математике состоит из двух частей, включающих в себя 19 заданий. Часть 1 содержит 12 заданий с кратким ответом базового и повышенного уровней сложности. Часть 2 содержит 7 заданий с развёрнутым ответом повышенного и высокого уровней сложности.

На выполнение экзаменационной работы по математике отводится 3 часа 55 минут (235 минут).

Ответы к заданиям 1–12 записываются в виде целого числа или конечной десятичной дроби.

При выполнении заданий 13–19 требуется записать полное решение на отдельном листе бумаги.

При выполнении заданий можно пользоваться черновиком. **Записи в черновике, а также в тексте контрольных измерительных материалов не учитываются при оценивании работы.**

Баллы, полученные Вами за выполненные задания, суммируются. Постарайтесь выполнить как можно больше заданий и набрать наибольшее количество баллов.

После завершения работы проверьте, чтобы ответ на каждое задание был записан под правильным номером.

Желаем успеха!

© 2026 год. Вариант сгенерирован на сайте kim365.ru
Публикация в интернете или печатных изданиях без письменного согласия запрещена

Ответом к каждому заданию является конечная десятичная дробь, целое число или последовательность цифр. Запишите ответы к заданиям в поле ответа в тексте работы.

1 Сырок стоит 19 рублей. Какое наибольшее число сырков можно купить на 210 рублей?

Ответ: _____

2 Установите соответствие между величинами и их возможными значениями: к каждому элементу первого столбца подберите соответствующий элемент из второго столбца.

ВЕЛИЧИНЫ	ЗНАЧЕНИЯ
А) масса куриного яйца	1) 2,5 мг
Б) масса детской коляски	2) 14 кг
В) масса взрослого лося	3) 50 г
Г) масса активного вещества в таблетке	4) 500 кг

В таблице под каждой буквой, соответствующей величине, укажите номер её возможного значения.

Ответ:

А	Б	В	Г

3 На графике изображена зависимость атмосферного давления от высоты над уровнем моря. На горизонтальной оси отмечена высота над уровнем моря в километрах, на вертикальной – давление в миллиметрах ртутного столба.

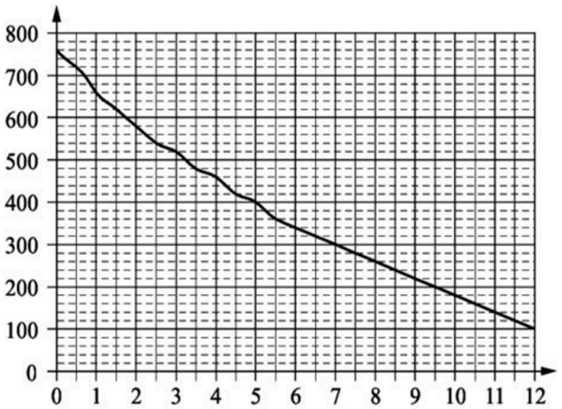

Определите по графику, на какой высоте (в километрах) летит воздушный шар, если барометр, находящийся в корзине шара, показывает давление 480 миллиметров ртутного столба.

Ответ: _____

4 Работа постоянного тока (в джоулях) вычисляется по формуле $A = I^2Rt$, где I — сила тока (в амперах), R — сопротивление (в омах), t — время (в секундах). Пользуясь этой формулой, найдите A (в джоулях), если $t = 5$ с, $I = 2$ А и $R = 13$ Ом.

Ответ: _____

© 2026 год. Вариант сгенерирован на сайте kim365.ru
Публикация в интернете или печатных изданиях без письменного согласия запрещена

5 В фирме такси в данный момент свободно 20 машин: 8 чёрных, 7 жёлтых и 5 зелёных. По вызову выехала одна из машин, случайно оказавшаяся ближе всего к заказчику. Найдите вероятность того, что к нему приедет жёлтое такси.

Ответ: _____

6 Для обслуживания международного семинара необходимо собрать группу переводчиков. Сведения о кандидатах представлены в таблице.

Номер переводчика	Языки	Стоимость услуг (руб. в день)
1	Немецкий, английский	5950
2	Немецкий, испанский	5800
3	Английский	2000
4	Немецкий	2800
5	Французский	4000
6	Испанский, французский	7100

Пользуясь таблицей, соберите хотя бы одну группу, в которой переводчики вместе владеют всеми четырьмя языками: английским, немецким, испанским и французским, а суммарная стоимость их услуг не превышает 12 000 рублей в день.

В ответе укажите какой-нибудь один набор номеров переводчиков без пробелов, запятых и других дополнительных символов.

Ответ: _____

© 2026 год. Вариант сгенерирован на сайте kim365.ru
Публикация в интернете или печатных изданиях без письменного согласия запрещена

7 На рисунке точками изображено число родившихся мальчиков и девочек (по отдельности) за каждый календарный месяц 2013 года в городском роддоме. По горизонтали указаны месяцы, по вертикали — число рождений. Для наглядности точки соединены линиями.

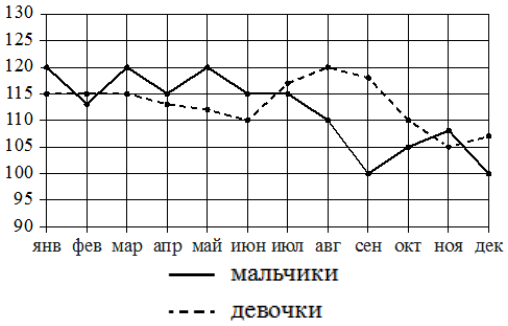

Пользуясь рисунком, поставьте в соответствие каждому из указанных периодов времени характеристику рождаемости в этот период.

ПЕРИОДЫ ВРЕМЕНИ	ХАРАКТЕРИСТИКИ
А) январь – март	1) в каждый месяц этого периода число рождений девочек и мальчиков различалось не более чем на 5
Б) апрель – июнь	2) в один из месяцев этого периода число рождений мальчиков и девочек различалось более чем на 10
В) июль – сентябрь	3) в каждом месяце этого периода мальчиков рождалось больше, чем девочек
Г) октябрь – декабрь	4) в один из месяцев этого периода число рождений девочек достигло минимума за весь год

В таблице под каждой буквой укажите соответствующий номер.

Ответ:

А	Б	В	Г

8 В некоторый момент температура воздуха в Москве была равна 3 ˚С. В этот же момент в Архангельске было на 4 ˚С холоднее, чем в Москве, а в Махачкале на 3 ˚С теплее, чем в Москве. Выберите все утверждения, которые были верны в этот момент при указанных условиях.

1) В Москве было теплее, чем в Махачкале.
2) В любом городе, помимо указанных, в котором было теплее, чем в Архангельске, также было теплее, чем в Москве.
3) В любом городе, помимо указанных, в котором было теплее, чем в Махачкале, также было теплее, чем в Москве.
4) В Махачкале было теплее, чем в Архангельске.

В ответе запишите номера выбранных утверждений без пробелов, запятых и других дополнительных символов.

Ответ: _____

© 2026 год. Вариант сгенерирован на сайте kim365.ru
Публикация в интернете или печатных изданиях без письменного согласия запрещена

9 План местности разбит на клетки. Каждая клетка обозначает квадрат $1\,\text{м} \times 1\,\text{м}$. Найдите площадь участка, выделенного на плане. Ответ дайте в квадратных метрах.



Ответ: _____

10 На плане указано, что прямоугольная комната имеет площадь 30,6 кв. м. Точные измерения показали, что ширина комнаты равна 5 м, а длина 6,2 м. На сколько квадратных метров площадь комнаты отличается от площади, указанной на плане?

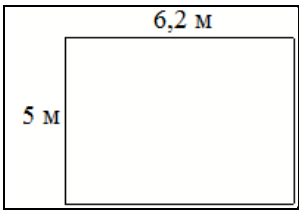

Ответ: _____

11 В бак, имеющий форму прямой призмы, налито 5 л воды. После полного погружения в воду детали уровень воды в баке поднялся в 1,4 раза. Найдите объём детали. Ответ дайте в кубических сантиметрах, зная, что в одном литре 1000 кубических сантиметров.

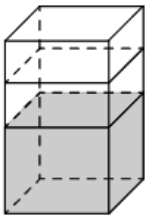

Ответ: _____

12 В выпуклом четырёхугольнике $ABCD$ известно, что $AB = BC$, $AD = CD$, $\angle B = 55^\circ$, $\angle D = 137^\circ$. Найдите величину угла A. Ответ дайте в градусах.

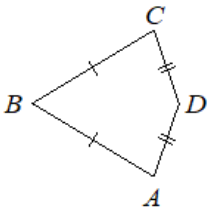

Ответ: _____

13 Найдите объём правильной четырёхугольной пирамиды, сторона основания которой равна 4, а боковое ребро равно $\sqrt{17}$.

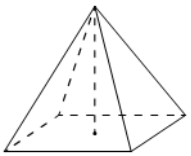

Ответ: _____

14 Найдите значение выражения $\frac{7}{18} + \frac{5}{2} \cdot \frac{4}{9}$.

Ответ: _____

© 2026 год. Вариант сгенерирован на сайте kim365.ru
Публикация в интернете или печатных изданиях без письменного согласия запрещена

15 После уценки телевизора его новая цена составила 0,65 от старой цены. На сколько процентов уменьшилась цена телевизора в результате уценки?

Ответ: _____

16 Найдите значение выражения $(0{,}1)^2 \cdot 10^3 : 2^{-2}$.

Ответ: _____

17 Найдите корень уравнения $(2x-1)^2 - 4x^2 = 0$.

Ответ: _____

18 На прямой отмечены числа m и n.

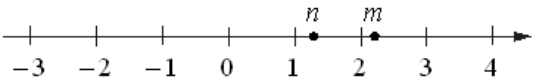

Каждому из четырёх чисел в левом столбце соответствует отрезок, которому оно принадлежит. Установите соответствие между числами и отрезками из правого столбца.

ЧИСЛА	ОТРЕЗКИ
А) mn	1) $[0\,;\,1]$
Б) $m+n$	2) $[1\,;\,2]$
В) $\dfrac{n}{m}$	3) $[2\,;\,3]$
Г) $\dfrac{1}{m}+n$	4) $[3\,;\,4]$

Впишите в приведённую в ответе таблицу под каждой буквой соответствующий отрезку номер.

Ответ:

А	Б	В	Г

19 Найдите трёхзначное натуральное число, меньшее 500, которое при делении и на 8, и на 5 даёт равные ненулевые остатки и первая справа цифра в записи которого является средним арифметическим двух других его цифр. В ответе укажите какое-нибудь одно такое число.

Ответ: _____

20 Первую треть пути автомобиль ехал со скоростью 40 км/ч, вторую треть — со скоростью 120 км/ч, а последнюю — со скоростью 70 км/ч. Найдите среднюю скорость автомобиля на протяжении всего пути. Ответ дайте в км/ч.

Ответ: _____

© 2026 год. Вариант сгенерирован на сайте kim365.ru
Публикация в интернете или печатных изданиях без письменного согласия запрещена

21 В доме всего десять квартир с номерами от 1 до 10. В каждой квартире живёт не меньше одного и не больше четырёх человек. В квартирах с 1-й по 6-ю включительно живёт суммарно 9 человек, а в квартирах с 4-й по 10-ю включительно живёт суммарно 22 человека. Сколько всего человек живёт в этом доме?

Ответ: _____

© 2026 год. Вариант сгенерирован на сайте kim365.ru
Публикация в интернете или печатных изданиях без письменного согласия запрещена