Тренировочная работа в формате ЕГЭ
по МАТЕМАТИКЕ

Базовый уровень

Дата: __ _____ 2026 года

Вариант _____

Выполнена: ФИО_____ класс _____

Инструкция по выполнению работы

Работа по математике состоит из двух частей, включающих в себя 19 заданий. Часть 1 содержит 12 заданий с кратким ответом базового и повышенного уровней сложности. Часть 2 содержит 7 заданий с развёрнутым ответом повышенного и высокого уровней сложности.

На выполнение экзаменационной работы по математике отводится 3 часа 55 минут (235 минут).

Ответы к заданиям 1–12 записываются в виде целого числа или конечной десятичной дроби.

При выполнении заданий 13–19 требуется записать полное решение на отдельном листе бумаги.

При выполнении заданий можно пользоваться черновиком. **Записи в черновике, а также в тексте контрольных измерительных материалов не учитываются при оценивании работы.**

Баллы, полученные Вами за выполненные задания, суммируются. Постарайтесь выполнить как можно больше заданий и набрать наибольшее количество баллов.

После завершения работы проверьте, чтобы ответ на каждое задание был записан под правильным номером.

Желаем успеха!

© 2026 год. Вариант сгенерирован на сайте kim365.ru
Публикация в интернете или печатных изданиях без письменного согласия запрещена

Ответом к каждому заданию является конечная десятичная дробь, целое число или последовательность цифр. Запишите ответы к заданиям в поле ответа в тексте работы.

1 За 20 минут автобус проехал 23 километра. Сколько километров он проедет за 35 минут, если будет ехать с той же скоростью?

Ответ: _____

2 Установите соответствие между величинами и их возможными значениями: к каждому элементу первого столбца подберите соответствующий элемент из второго столбца.

ВЕЛИЧИНЫ	ЗНАЧЕНИЯ
А) объём воды в Азовском море	1) 150 м ^{3}
Б) объём ящика с инструментами	2) 1 л
В) объём грузового отсека транспортного самолёта	3) 36 л
Г) объём бутылки растительного масла	4) 256 км ^{3}

В таблице под каждой буквой, соответствующей величине, укажите номер её возможного значения.

Ответ:

А	Б	В	Г

3 На рисунке жирными точками показан курс австралийского доллара, установленный Центробанком РФ во все рабочие дни в октябре 2010 года. По горизонтали указываются числа месяца, по вертикали – цена доллара в рублях. Для наглядности жирные точки на рисунке соединены линией.

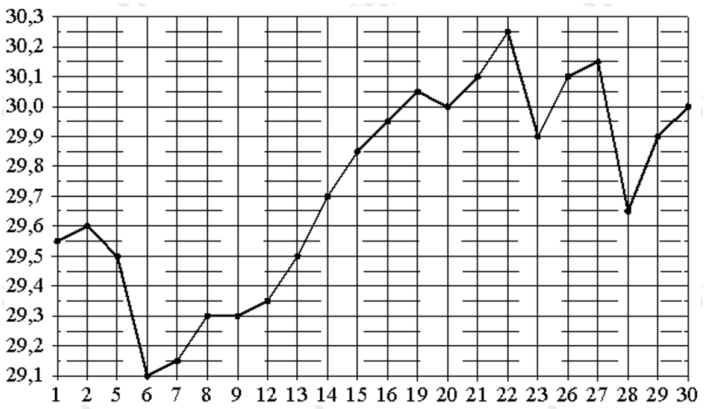

Определите по рисунку, сколько дней из данного периода курс австралийского доллара был меньше 29,8 рубля.

Ответ: _____

© 2026 год. Вариант сгенерирован на сайте kim365.ru
Публикация в интернете или печатных изданиях без письменного согласия запрещена

4 Чтобы перевести температуру из шкалы Цельсия в шкалу Фаренгейта, пользуются формулой $t_{\text{F}} = 1{,}8t_{\text{C}} + 32$, где t_{C} — температура в градусах по шкале Цельсия, t_{F} — температура в градусах по шкале Фаренгейта. Скольким градусам по шкале Фаренгейта соответствует 20 градусов по шкале Цельсия?

Ответ: _____

5 В коробке вперемешку лежат чайные пакетики с чёрным и зелёным чаем, одинаковые на вид, причём пакетиков с чёрным чаем в 3 раза больше, чем пакетиков с зелёным. Найдите вероятность того, что случайно выбранный из этой коробки пакетик окажется пакетиком с зелёным чаем.

Ответ: _____

6 Турист подбирает экскурсии. Сведения об экскурсиях представлены в таблице.

Номер экскурсии	Посещаемые объекты	Стоимость (руб.)
1	Музей живописи	150
2	Загородный дворец	240
3	Крепость	240
4	Загородный дворец, крепость	250
5	Загородный дворец, парк	300
6	Парк, музей живописи	200

Пользуясь таблицей, подберите набор экскурсий так, чтобы турист посетил четыре объекта: крепость, загородный дворец, парк и музей живописи, а суммарная стоимость экскурсий не превышала 650 рублей.
В ответе запишите какой-нибудь один набор номеров экскурсий без пробелов, запятых и других дополнительных символов.

Ответ: _____

© 2026 год. Вариант сгенерирован на сайте kim365.ru
Публикация в интернете или печатных изданиях без письменного согласия запрещена

7 На графике изображена зависимость скорости движения рейсового автобуса от времени. На вертикальной оси отмечена скорость автобуса в км/ч, на горизонтальной — время в минутах, прошедшее с начала движения автобуса.

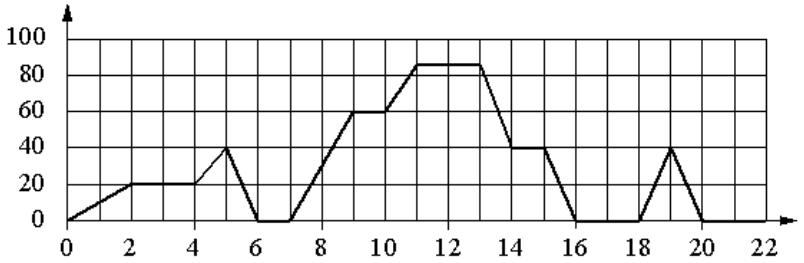

Пользуясь графиком, поставьте в соответствие каждому интервалу времени характеристику движения автобуса на этом интервале.

ИНТЕРВАЛЫ ВРЕМЕНИ	ХАРАКТЕРИСТИКИ
А) 4–8 мин.	1) автобус не увеличивал скорость на всём интервале
Б) 8–12 мин.	2) автобус ни разу не сбрасывал скорость
В) 12–16 мин.	3) была остановка длительностью 2 минуты
Г) 16–20 мин.	4) скорость не больше 40 км/ч на всём интервале, также была остановка длительностью ровно 1 минута

В таблице под каждой буквой укажите соответствующий номер.

Ответ:

А	Б	В	Г

8 Оля младше Алисы, но старше Иры. Лена не младше Иры. Выберите все утверждения, которые верны при указанных условиях.

1) Алиса и Ира одного возраста.
2) Среди указанных четырёх человек нет никого младше Иры.
3) Алиса старше Иры.
4) Алиса и Оля одного возраста.

В ответе запишите номера выбранных утверждений без пробелов, запятых и других дополнительных символов.

Ответ: _____

© 2026 год. Вариант сгенерирован на сайте kim365.ru
Публикация в интернете или печатных изданиях без письменного согласия запрещена

9 План местности разбит на клетки. Каждая клетка обозначает квадрат 1 м × 1 м. Найдите площадь участка, изображённого на плане. Ответ дайте в квадратных метрах.

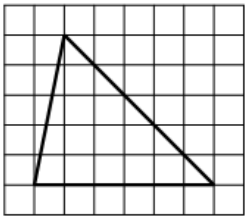

Ответ: _____

10 Дачный участок имеет форму квадрата, стороны которого равны 30 м. Дом, расположенный на участке, имеет форму прямоугольника $8\,\text{м} \times 5\,\text{м}$. Найдите площадь оставшейся части участка. Ответ дайте в квадратных метрах.

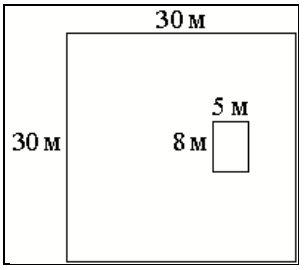

Ответ: _____

11 Однородный шар диаметром 5 см весит 500 граммов. Сколько граммов весит шар диаметром 3 см, изготовленный из того же материала?

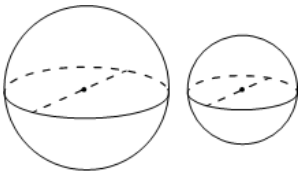

Ответ: _____

12 В треугольнике ABC известно, что $AB = BC$, $AC = 12$, $\operatorname{tg}\angle BAC = \dfrac{\sqrt{13}}{6}$. Найдите длину стороны AB.

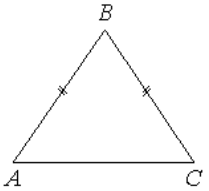

Ответ: _____

13 В треугольной пирамиде $ABCD$ рёбра AB, AC и AD взаимно перпендикулярны. Найдите объём этой пирамиды, если $AB = 3$, $AC = 18$ и $AD = 7$.

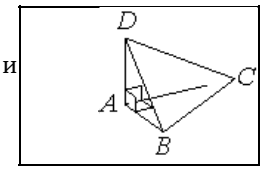

Ответ: _____

14 Найдите значение выражения $(7{,}6 - 3{,}1) \cdot 6{,}8$.

Ответ: _____

© 2026 год. Вариант сгенерирован на сайте kim365.ru
Публикация в интернете или печатных изданиях без письменного согласия запрещена

15 Государству принадлежит 75% акций предприятия, остальные акции принадлежат частным лицам. Общая прибыль предприятия после уплаты налогов за год составила 16 млн рублей. Какая сумма из этой прибыли должна пойти на выплату частным акционерам? Ответ дайте в миллионах рублей.

Ответ: _____

16 Найдите значение выражения $\frac{8^3}{2^4} : 2^2$.

Ответ: _____

17 Найдите корень уравнения $13^{2x+3} : 13^{-4x-11} = 169$.

Ответ: _____

18 На координатной прямой отмечено число m.

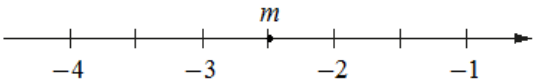

Каждому из четырёх чисел в левом столбце соответствует отрезок, которому оно принадлежит. Установите соответствие между числами и отрезками из правого столбца.

ЧИСЛА	ОТРЕЗКИ
А) $\frac{m}{10}$	1) $[-2;\ -1]$
Б) m^2-3	2) $[-1;\ 0]$
В) $-\sqrt{-m}$	3) $[0;\ 1]$
Г) $-\frac{1}{m}$	4) $[3;\ 4]$

Впишите в приведённую в ответе таблицу под каждой буквой соответствующий отрезку номер.

Ответ:

А	Б	В	Г

19 На шести карточках написаны цифры 1; 2; 3; 3; 4; 7 (по одной цифре на каждой карточке). В выражении

□+□□+□□□

вместо каждого квадратика положили карточку из данного набора. Оказалось, что полученная сумма делится на 20. В ответе укажите какую-нибудь одну такую сумму.

Ответ: _____

© 2026 год. Вариант сгенерирован на сайте kim365.ru
Публикация в интернете или печатных изданиях без письменного согласия запрещена

20 Первую треть пути автомобиль ехал со скоростью 30 км/ч, вторую треть — со скоростью 120 км/ч, а последнюю — со скоростью 40 км/ч. Найдите среднюю скорость автомобиля на протяжении всего пути. Ответ дайте в км/ч.

Ответ: _____

21 Кузнечик прыгает вдоль координатной прямой в любом направлении на единичный отрезок за прыжок, делая первый прыжок из начала координат. Сколько существует различных точек на координатной прямой, в которых кузнечик может оказаться, совершив ровно 12 прыжков?

Ответ: _____

© 2026 год. Вариант сгенерирован на сайте kim365.ru
Публикация в интернете или печатных изданиях без письменного согласия запрещена